Estratégia Concursos

2ª Rodada Polícia Federal (Agente de Polícia)

Polícia Federal (Agente de Polícia)

Rodadas Avançadas de Simulados

Autor:

Marcus Vinicius Oliveira de Toloza

23 de Março de 2025

98276239072 - FABIANO CARBONELL DA SILVA

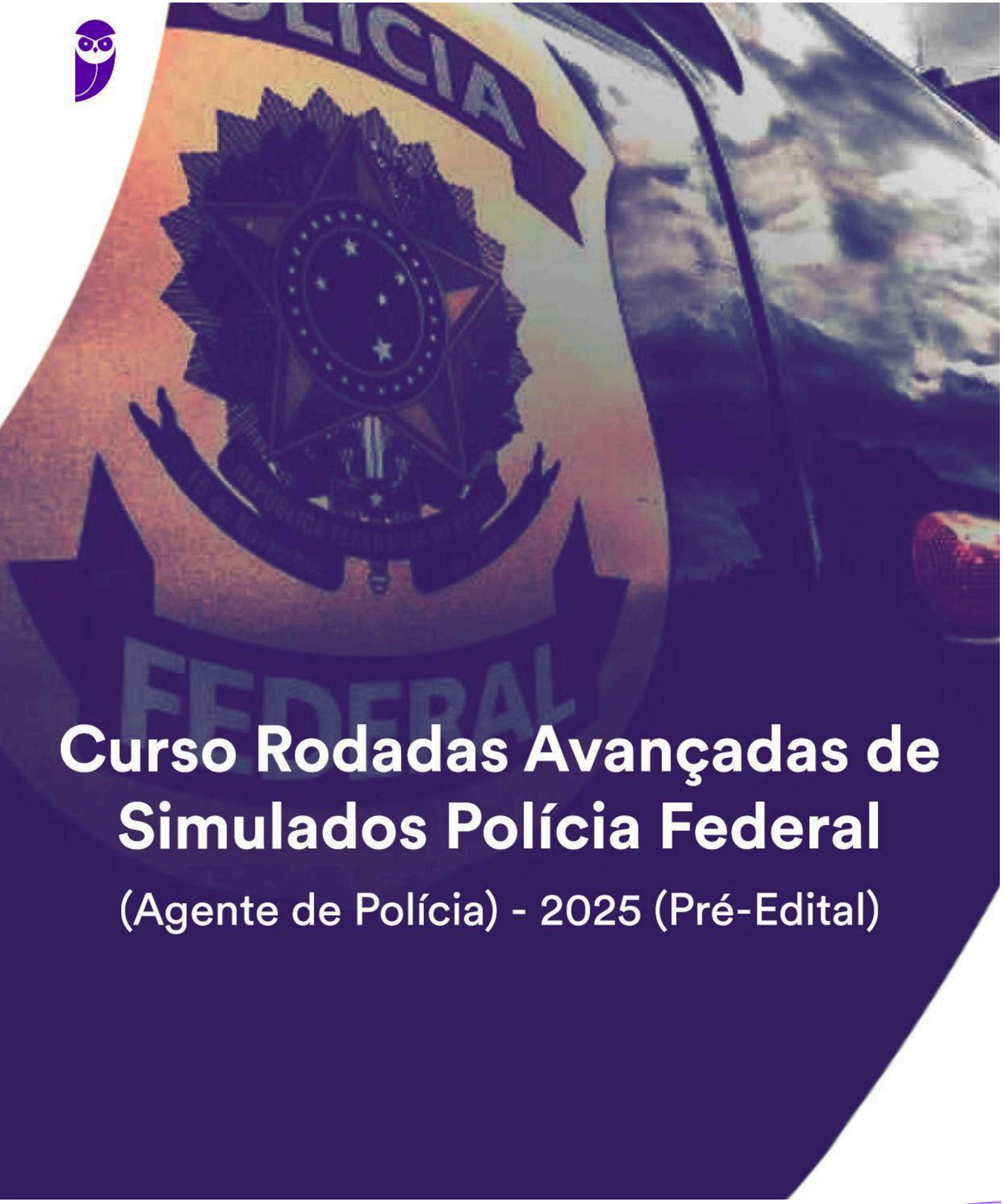

Curso Rodadas Avançadas de Simulados Polícia Federal

(Agente de Polícia) - 2025 (Pré-Edital)

98276239072 - FABIANO CARBONELL DA SILVA

Gabarito Preliminar

Rodada Avançada Polícia Federal (Agente de Polícia)

01	CERTO	**21**	ERRADO	**41**	CERTO	**61**	CERTO	**81**	ERRADO	**101**	CERTO
02	CERTO	**22**	CERTO	**42**	ERRADO	**62**	CERTO	**82**	CERTO	**102**	ERRADO
03	CERTO	**23**	ERRADO	**43**	CERTO	**63**	ERRADO	**83**	ERRADO	**103**	ERRADO
04	ERRADO	**24**	CERTO	**44**	CERTO	**64**	CERTO	**84**	ERRADO	**104**	ERRADO
05	CERTO	**25**	ERRADO	**45**	CERTO	**65**	CERTO	**85**	CERTO	**105**	ERRADO
06	CERTO	**26**	ERRADO	**46**	ERRADO	**66**	ERRADO	**86**	CERTO	**106**	CERTO
07	ERRADO	**27**	CERTO	**47**	ERRADO	**67**	ERRADO	**87**	ERRADO	**107**	ERRADO
08	CERTO	**28**	ERRADO	**48**	CERTO	**68**	ERRADO	**88**	CERTO	**108**	CERTO
09	ERRADO	**29**	CERTO	**49**	ERRADO	**69**	CERTO	**89**	CERTO	**109**	CERTO
10	ERRADO	**30**	CERTO	**50**	CERTO	**70**	ERRADO	**90**	ERRADO	**110**	ERRADO
11	ERRADO	**31**	CERTO	**51**	CERTO	**71**	CERTO	**91**	ERRADO	**111**	ERRADO
12	CERTO	**32**	ERRADO	**52**	CERTO	**72**	ERRADO	**92**	ERRADO	**112**	ERRADO
13	ERRADO	**33**	ERRADO	**53**	CERTO	**73**	CERTO	**93**	ERRADO	**113**	CERTO
14	ERRADO	**34**	CERTO	**54**	ERRADO	**74**	CERTO	**94**	CERTO	**114**	CERTO
15	ERRADO	**35**	CERTO	**55**	CERTO	**75**	CERTO	**95**	ERRADO	**115**	ERRADO
16	CERTO	**36**	ERRADO	**56**	CERTO	**76**	ERRADO	**96**	ERRADO	**116**	CERTO
17	CERTO	**37**	CERTO	**57**	ERRADO	**77**	CERTO	**97**	ERRADO	**117**	ERRADO
18	ERRADO	**38**	CERTO	**58**	ERRADO	**78**	CERTO	**98**	CERTO	**118**	ERRADO
19	CERTO	**39**	ERRADO	**59**	ERRADO	**79**	CERTO	**99**	ERRADO	**119**	CERTO
20	ERRADO	**40**	ERRADO	**60**	CERTO	**80**	CERTO	**100**	CERTO	**120**	ERRADO

Ranking

Clique no link para visualizar o ranking ou copie e cole no seu navegador.

http://estrategi.ac/jyb1cq

O que você achou deste simulado?

Conte-nos como foi sua experiência ao fazer este simulado.
Sua opinião é muito importante para nós!

https://forms.gle/ZquhFz7Kx7jG8Fyu7

Gabarito definitivo e relatório de desempenho

*Ao final de **quinta-feira (27/03)**, o gabarito definitivo, o ranking geral e os relatórios detalhados de desempenho serão liberados na sua área do aluno.*

98276239072 - FABIANO CARBONELL DA SILVA

RECURSOS

*O prazo para enviar recursos se encerra na **terça-feira (25/03)**, às **12:00h**.*

http://estrategi.ac/4jd81r

98276239072 - FABIANO CARBONELL DA SILVA

-- BLOCO I --

LÍNGUA PORTUGUESA + REDAÇÃO OFICIAL

Texto para as questões 1 a 18.

Insônia infeliz e feliz

De repente os olhos bem abertos. E a escuridão toda escura. Deve ser noite alta. Acendo a luz da cabeceira e para o meu desespero são duas horas da noite. E a cabeça clara e lúcida. Ainda arranjarei alguém igual a quem eu possa telefonar às duas da noite e que não me maldiga. Quem? Quem sofre de insônia? E as horas não passam. Saio da cama, tomo café. E ainda por cima com um desses horríveis substitutos do açúcar porque Dr. José Carlos Cabral de Almeida, dietista, acha que preciso perder os quatro quilos que aumentei com a superalimentação depois do incêndio. E o que se passa na luz acesa da sala? Pensa-se uma escuridão clara. Não, não se pensa. Sente-se. Sente-se uma coisa que só tem um nome: solidão. Ler? Jamais. Escrever? Jamais. Passa-se um tempo, olha-se o relógio, quem sabe são cinco horas. Nem quatro chegaram. Quem estará acordado agora? E nem posso pedir que me telefonem no meio da noite pois posso estar dormindo e não perdoar. Tomar uma pílula para dormir? Mas e o vício que nos espreita? Ninguém me perdoaria o vício. Então fico sentada na sala, sentindo. Sentindo o quê? O nada. E o telefone à mão.

Mas quantas vezes a insônia é um dom. De repente acordar no meio da noite e ter essa coisa rara: solidão. Quase nenhum ruído. Só o das ondas do mar batendo na praia. E tomo café com gosto, toda sozinha no mundo. Ninguém me interrompe o nada. É um nada a um tempo vazio e rico. E o telefone mudo, sem aquele toque súbito que sobressalta. Depois vai amanhecendo. As nuvens se clareando sob um sol às vezes pálido como uma lua, às vezes de fogo puro. Vou ao terraço e sou talvez a primeira do dia a ver a espuma branca do mar. O mar é meu, o sol é meu, a terra é minha. E sinto-me feliz por nada, por tudo. Até que, como o sol subindo, a casa vai acordando e há o reencontro com meus filhos sonolentos.

Clarice Lispector

Com base nas ideias veiculadas no texto, julgue os itens a seguir.

1. Ao dizer “O mar é meu, o sol é meu, a terra é minha.” (antepenúltimo período do último parágrafo), a autora demonstra um senso de conexão íntima e subjetiva com o ambiente.

Gabarito: Certo

Comentário:

Exatamente! A autora usa essa **metáfora** para expressar a experiência subjetiva de pertencimento e conexão com a natureza.

2. Em relação à estrutura, pode-se afirmar que o texto combina elementos narrativos e descritivos, alternando entre a experiência concreta da insônia e a percepção subjetiva dessa vivência.

Gabarito: Certo

Comentário:

Isso mesmo. O texto mescla **descrição das sensações da insônia** com narração das ações da autora.

3. A alternância entre frases curtas e longas no texto de Clarice Lispector tem o efeito de reforçar a oscilação emocional da autora entre a inquietação e a serenidade.

Gabarito: Certo

Comentário:

Isso mesmo. A variação na construção frasal reflete a alternância entre angústia e contentamento.

4. A autora apresenta o conceito de solidão como um fenômeno estático e inalterável ao longo do texto.

Gabarito: Errado

Comentário:

98276239072 - FABIANO CARBONELL DA SILVA

Na verdade, o texto alterna entre a solidão infeliz e a solidão feliz, mostrando suas diferentes facetas. Logo, não se trata de algo estático e inalterável, mas sim algo que pode mudar dependendo da experiência

5. O texto expõe a experiência da insônia sob duas perspectiva distintas: enquanto a primeira descreve a insônia como uma experiência angustiante e solitária, a segunda apresenta a mesma experiência como algo prazeroso e introspectivo.

Gabarito: Certo

Comentário:

No primeiro parágrafo, a insônia é descrita de maneira angustiante: "*sente-se uma coisa que só tem um nome: solidão*." No segundo, é retratada como uma **experiência enriquecedora**: "*Ninguém me interrompe o nada. É um nada a um tempo vazio e rico*." Logo, a oposição entre os dois momentos é evidente.

6. A expressão "espreita" em "Mas e o vício que nos espreita?" apresenta sentido análogo ao do termo **vigia**.

Gabarito: Certo

Comentário:

Isso mesmo. O termo "**espreitar**" foi empregado com sentido de "vigiar":

- "*Mas e o vício que nos **espreita**?*"
- "*Mas e o vício que nos **vigia**?*"

Observe o que dispõe o dicionário Houaiss a respeito do vocábulo:

espreitar (es.prei.tar)

verbo t.d. e int.

1 observar em segredo e com atenção; vigiar • *e. a caça • passou horas espreitando, até o animal sair da toca*

2 esperar às escondidas para atacar; tocaiar • *o ladrão espreitou o porteiro e o rendeu • a polícia ficou espreitando até o bandido aparecer*

verbo t.d.

3 olhar com atenção • *e. alguma movimentação na rua escura*

4 ficar alerta, esperando (ocasião, chance etc.) • *espreitava uma chance para falar com a moça*

7. No trecho "Até que, como o sol subindo, a casa vai acordando e há o reencontro com meus filhos sonolentos." (último período do último parágrafo), os vocábulos "reencontro" e "filhos" classificam-se, gramaticalmente, como substantivo e adjetivo, respectivamente.

Gabarito: Errado

Comentário:

Ambos são substantivos, classe de palavra utilizada para denominar os seres em geral, ou seja, se existe, então tem um nome (*substantivo*). Exemplo:

- **nomes de pessoas e de lugares**: *Maria, Portugal, Brasil*...
- **nomes de espécies, de instituições**: *árvore, gato, cidade*...
- **nomes de ações, estado, qualidades**: *mentira, juventude, verdade*…

Quanto ao gênero, vejamos:

* substantivos **sem** gênero | substantivos uniformes: são aqueles que não possuem designação de masculino e feminino e nem acompanha termos para determiná-los. Exemplo: a criança (será necessário dizer se a criança é menino ou menina). Nesse caso, ainda há uma subdivisão, confira:

- **epiceno**: para nomear animais - jacaré (pode ser para macho ou para fêmea)
- **sobrecomuns**: para nomear pessoas - a testemunha (pode ser para masculino ou feminino)

98276239072 - FABIANO CARBONELL DA SILVA

* substantivos de **dois** gêneros: são aqueles que apresentam apenas uma forma tanto para o masculino quanto para o feminino. Exemplo: **o** estudante | **a** estudante.

* substantivos biformes: são aqueles que apresentam uma forma específica para o masculino (**cantor**) e uma forma específica para o feminino (**cantora**).

8. Em "As nuvens se clareando sob um sol às vezes pálido como uma lua, às vezes de fogo puro.", o termo "como" exprime noção de comparação.

Gabarito: Certo

Comentário:

Observemos o trecho em questão:

"*As nuvens se clareando sob um sol às vezes pálido* ***como uma lua****, às vezes de fogo puro*." = nesse caso, temos uma comparação relacionada à lua.

9. Em "E nem posso pedir que me telefonem no meio da noite pois posso estar dormindo e não perdoar.", o vocábulo "pois" está empregado com sentido conclusivo.

Gabarito: Errado

Comentário:

A conjunção "**pois**" é coordenativa explicativa. Dessa forma, no contexto em questão, a função desse termo é "**explicar**" o motivo de ela não poder pedir que a telefonassem no meio da noite. Sobre as conjunções, temos o seguinte:

- As conjunções utilizadas com função de "**adicionar**" são as conjunções coordenativas aditivas: *e, ainda, nem, bem como*...
- As conjunções utilizadas com função de "**concluir**" são as conjunções coordenativas conclusivas: *portanto, assim, logo, por isso, dessa forma, desse modo, dessa maneira*...
- As conjunções utilizadas com função de "**explicar**" são as conjunções coordenativas explicativas: *que, porquanto, pois, porque*...
- As conjunções utilizadas com função de "**alternar**" são as conjunções coordenativas alternativas: *ou...ou* (repetida ou não)*, ora…ora, quer...quer, nem...nem, seja...seja*...

10. Estaria mantida a correção gramatical do trecho "Pensa-se uma escuridão clara." caso a partícula "se", em "Pensa-se", fosse deslocada para a posição proclítica — **Se pensa**.

Gabarito: Errado

Comentário:

A gramática apresenta uma série de regras e proibições em relação à colocação pronominal. Vejamos:

- **não iniciar orações** com pronome oblíquo átono;
- não inserir pronome após **verbos no futuro**;
- não inserir pronome após **verbos no particípio**;
- se houver palavra invariável antes do verbo, a próclise será obrigatória;
- com verbos no infinitivo, a ênclise e a próclise são aceitas, ainda que haja palavra atrativa antes do verbo;
- com as conjunções coordenativas, a ênclise e a próclise são aceitas.

Veja que o caso analisado se encaixa no primeiro caso de proibição apresentado anteriormente e, por essa razão, o item está incorreto.

11. Em relação ao tempo verbal predominante no texto, é possível afirmar que o pretérito imperfeito é o tempo verbal mais frequente, uma vez que a autora rememora hábitos passados.

Gabarito: Errado

Comentário:

Na verdade, o tempo verbal predominante no texto é o presente do indicativo ("**sente-se**", "**acendo**", "**tomo**"), que dá ao texto um caráter de simultaneidade com a leitura.

98276239072 - FABIANO CARBONELL DA SILVA

12. No excerto "Até que, como o sol subindo, a casa vai acordando e há o reencontro com meus filhos sonolentos." (último período do texto), o vocábulo "reencontro" integra o complemento direto da forma verbal que lhe é antecedente.

Gabarito: Certo

Comentário:

Aqui, temos uma oração classificada como **sem sujeito**, já que ocorre a ausência de um sujeito determinado. Então, em "*Até que, como o sol subindo, a casa vai acordando e* ***há o reencontro*** *com meus filhos sonolentos*", o segmento "**o reencontro**" realmente é o complemento verbal/objeto direto do verbo "**haver**", uma vez que complementa o sentido do verbo "**há**". Isso quer dizer que, apesar de o verbo "**haver**" com sentido de "**existir**" não apresentar sujeito, ele apresenta objeto direto normalmente.

13. O segmento destacado em "E ainda por cima com um desses horríveis substitutos do açúcar porque Dr. José Carlos Cabral de Almeida, dietista, acha **que preciso perder os quatro quilos** que aumentei com a superalimentação depois do incêndio." exerce função sintática de sujeito.

Gabarito: Errado

Comentário:

Analisemos a alternativa correta:

- "*E ainda por cima com um desses horríveis substitutos do açúcar porque Dr. José Carlos Cabral de Almeida, dietista, acha* ***que preciso perder os quatro quilos*** *que aumentei com a superalimentação depois do incêndio.*"

O termo "**que**", no segmento apresentado, é uma **conjunção integrante**, que é empregada quando se quer iniciar orações que desempenham funções de **sujeito, objeto direto, objeto indireto, complemento nominal, predicado nominal e aposto**. No caso, o "**que**" inicia uma **oração subordinada substantiva objetiva direta**: Dr. José Carlos Cabral de Almeida, dietista, acha o quê? Isso (*que preciso perder os quatro quilos*).

Lembrando que as conjunções integrantes **não apresentam funções sintáticas** por si só, ou seja, servem apenas para ligar termos da oração, e é essa oração que exercerá alguma das funções sintáticas mencionadas anteriormente. Além disso, uma "**pegadinha**" bastante comum nas bancas é retirar a conjunção integrante de determinado trecho e dizer que o restante é uma oração subordinada substantiva, o que é errado, pois a oração inclui a conjunção integrante. Veja:

- "*E ainda por cima com um desses horríveis substitutos do açúcar porque Dr. José Carlos Cabral de Almeida, dietista, acha que* ***preciso perder os quatro quilos*** *que aumentei com a superalimentação depois do incêndio.*" = o trecho "**preciso perder os quatro quilos**" é uma oração subordinada substantiva objetiva direta? **NÃO**!
- "*E ainda por cima com um desses horríveis substitutos do açúcar porque Dr. José Carlos Cabral de Almeida, dietista, acha* ***que preciso perder os quatro quilos*** *que aumentei com a superalimentação depois do incêndio.*" = o trecho "**que preciso perder os quatro quilos**" é uma oração subordinada substantiva objetiva direta? **SIM**!

14. No décimo período do segundo parágrafo do texto, a partícula "se" classifica-se como partícula apassivadora.

Gabarito: Errado

Comentário:

Nesta questão, é de suma importância entender as **funções do "se"** a fim de definir qual sentido foi escolhido na frase em análise. Vejamos:

O "**se**" pode funcionar como:

* **substantivo**: quando estiver acompanhado por um determinante: *Ainda não consegui entender as funções do "**se**"*.

* **conjunção subordinativa**:

- **integrante**: dá início a uma *oração subordinada substantiva*: *Conferimos **se** o estoque estava abastecido*.

98276239072 - FABIANO CARBONELL DA SILVA

- **causal**: tem sentido de "**uma vez que**", "**já que**": ***Se*** *não tinha paciência com crianças, não poderia ter aceitado o cargo*.
- **condicional**: confere sentido de condição: ***Se*** *tivesse me ligado antes, saberia que eu não estaria em casa*.

* **pronome**: faz parte da classe de **pronomes oblíquos** e pode ser classificado como:

- **pronome apassivador**: ocorre na voz passiva sintética com **verbos transitivos diretos ou indiretos**: Entregaram-**se** as cartas.
- **índice de indeterminação do sujeito**: acompanha verbos de ligação, intransitivos e transitivos indiretos, que são conjugados na 3ª pessoa: *Precisa-**se** de pessoas comprometidas com o bem-estar social*.
- **parte que integra o verbo**: nesse caso, tem a ver com os verbos pronominais como *queixar-se, arrepender-se*, ou seja, verbos que indicam ações e atitudes do próprio falante: *Ele queixou-**se** durante toda a viagem*.
- **pronome reflexivo**: quer dizer "a si mesmo" e pode funcionar como objeto direto ou indireto ou, ainda, sujeito em caso de infinitivo: *A senhora penteou-**se** como se fosse a última vez*.

Afora, vejamos o trecho ao qual a questão se refere:

- "*As nuvens **se** **clareando** sob um sol às vezes pálido como uma lua, às vezes de fogo puro*."

Nesse caso, temos um verbo pronominal, ou seja, a partícula "**se**" acompanha o verbo intransitivo "**clarear**".

15. No segmento "E o telefone à mão." (último período do primeiro parágrafo), o emprego do sinal indicativo de crase no vocábulo "a" é opcional.

Gabarito: Errado

Comentário:

A **crase** é a fusão da preposição "**a**" e do artigo "**a(s)**", resultando em "**à(s)**". No caso, a questão exige conhecimentos sobre os casos obrigatórios relacionados ao emprego do sinal indicativo de crase.

A crase é obrigatória:

- antes de palavras femininas quando houver a união entre preposição "**a**" e o artigo definido feminino "**a**";
- locuções conjuntivas femininas;
- locuções prepositivas femininas;
- locuções adverbiais femininas;
- na indicação de horas exatas.

Por isso, ao dizer que em "E o telefone **à mão**." (último período do primeiro parágrafo), o emprego do sinal indicativo de crase é opcional, o item está incorreto, porque a expressão "**à mão**" é uma locução adverbial feminina.

16. As vírgulas empregadas no último período do último parágrafo tem como função isolar um adjunto adverbial deslocado de longa expressão.

Gabarito: Certo

Comentário:

Isso mesmo. Se indica circunstância de *lugar, tempo, modo, intensidade, dúvida, afirmação e negação*..., então se trata de um **adjunto adverbial**. No caso, o adjunto adverbial se refere ao verbo principal da oração "**agravaram-se**" (*agravaram-se com o aumento da violência urbana*). No caso, temos um adjunto adverbial de causa que justifica o agravamento dos sentimentos de medo e insegurança. Portanto, em "*Até que, **como o sol subindo**, a casa vai acordando e há o reencontro com meus filhos sonolentos*.", a expressão "**como o sol subindo**" é um adjunto adverbial deslocado de longa expressão e, por isso, a vírgula foi empregada.

17. No segundo período do segundo parágrafo, os dois-pontos foram utilizados para iniciar uma explicação.

Gabarito: Certo

98276239072 - FABIANO CARBONELL DA SILVA

Comentário:

Vamos ao trecho:

"*De repente acordar no meio da noite e ter* ***essa coisa rara: solidão***." = a informação inserida após os dois-pontos (sim, o emprego do hífen no termo "**dois-pontos**" é facultativo) é uma explicação do que é a "**essa coisa rara**" mencionada anteriormente.

Observe a seguir uma tabela com os **principais usos dos dois-pontos** e seus respectivos exemplos:

USO DOS DOIS-PONTOS	EXEMPLO
Para anunciar a **fala** dos personagens nas histórias de ficção	Maria olhou nos olhos de João e disse com firmeza**:** **— Eu nunca vou desistir de nós**.
Antes de uma citação (discurso direto)	O famoso filósofo Albert Einstein afirmou**:** **"A mente que se abre a uma nova ideia jamais volta ao seu tamanho original."**
Antes de certos **apostos** (explicativos, enumerativos, distributivos), principalmente quando forem enumerações	O escritor abordou vários temas em sua obra**: política, sociedade e filosofia**.
Antes de **orações subordinadas substantivas apositivas**	Só há um problema nisso tudo: **as pessoas se esquecem dos erros do passado e sempre volta a cometê-los**.
Para sinalizar um esclarecimento, um resultado ou um resumo do que foi dito anteriormente	É preciso estudar muito. Em resumo**:** **português, redação, matemática e raciocínio lógico**.
Antes de uma **explicação** ou esclarecimento	Todos estavam surpresos com a notícia**: a empresa, após anos de pesquisa, finalmente lançaria um produto revolucionário**.
Após um verbo ***dicendi*** (disse, perguntou, respondeu…)	Joana **perguntou: "Você viu meu livro em algum lugar?"**
Antes de explicações e enumerações após as expressões "**por exemplo**", "**isto é**", "**ou seja**", "**a saber**", "**como**", "**quais sejam**"	Havia muitos lugares para explorar na cidade, **por exemplo: parques, museus e, principalmente, os restaurantes locais**.
Sinalizar uma pausa entre **orações coordenadas** (por exemplo, quando as orações apresentam sentido de oposição, explicação/causa ou consequência)	Ele já estudou muito**: pode-se dizer que é um mestre em língua portuguesa**.
Sinalizar a invocação em **correspondências** (lembrando que a inicial maiúscula só será empregada após os dois-pontos se o termo seguinte assim o exigir)	Prezado senhor**:** **solicitamos a sua presença na reunião agendada para a próxima semana**.

18. Em "Depois vai amanhecendo.", o objetivo da utilização do termo "Depois" é estabelecer coesão reiterativa.

Gabarito: Errado

Comentário:

Na verdade, ocorre coesão interfrásica no caso analisado. Quanto a esse tipo de coesão, trata-se dos tipos de interdependência semântica apresentados entre as frases na superfície textual, isto é, há uma razão/sentido para cada termo apresentado. Por exemplo, no trecho "*Júpiter foi o primeiro planeta a se formar* ***depois*** *do nascimento do Sol, há cinco bilhões de anos*", o termo "depois" estabelece coesão interfrásica em relação à informação anterior (depois de algo/serve para explicar a ordem dos acontecimentos).

No que se refere à redação oficial, julgue os itens a seguir.

19. A precisão, um dos atributos da redação oficial, caracteriza-se pela articulação da linguagem para a perfeita compreensão da ideia veiculada, evitando-se expressões que confiram ambiguidade aos textos oficiais.

Gabarito: Certo

Comentário:

Isso mesmo. A **precisão** refere-se à exatidão das informações transmitidas. Na redação oficial, é crucial que os dados sejam apresentados de forma **precisa e correta**, sem distorções ou erros que comprometam a credibilidade do texto. Isso pressupõe a verificação cuidadosa dos fatos e a utilização de fontes confiáveis para embasar as informações apresentadas. Portanto, vejamos qual

98276239072 - FABIANO CARBONELL DA SILVA

das informações apresentadas está relacionada a essa ideia.

Além disso, é importante lembrar que o atributo da **precisão** complementa a clareza e caracteriza-se por:

a) articulação da linguagem comum ou técnica para a perfeita compreensão da ideia veiculada no texto;

*b) manifestação do pensamento ou da ideia com **as mesmas palavras**, evitando o emprego de sinonímia com propósito meramente estilístico; e*

c) escolha de expressão ou palavra que não confira duplo sentido ao texto.

20. A fim de que não haja dúvidas em relação ao entendimento de um texto oficial, o Manual de Redação da Presidência da República sugere que ele seja redigido com o máximo possível de detalhes.

Gabarito: Errado

Comentário:

Na verdade, apresentar muitos detalhamentos fere a **concisão**, que diz respeito à capacidade de transmitir informações de forma sucinta e direta, **sem excesso de palavras ou detalhes desnecessários**. Na redação oficial, é importante evitar o uso de expressões prolixas ou repetitivas que tornem o texto redundante e cansativo para o leitor, pois uma redação concisa é **mais eficiente e facilita a compreensão** das informações apresentadas. Logo, trata-se de um importante recurso para garantir a eficácia da comunicação na redação oficial que está elencado no Manual de Redação da Presidência da República conforme disposto a seguir:

- *clareza e precisão;*
- *objetividade;*
- ***concisão**;*
- *coesão e coerência;*
- *impessoalidade;*
- *formalidade e padronização; e*
- *uso da norma padrão da língua portuguesa.*

21. Independentemente do sexo do interlocutor, os adjetivos empregados em referência ao pronome de tratamento devem ser mantidos no gênero do substantivo que compõe a locução pronominal — por exemplo, Vossa Senhoria está convidada.

Gabarito: Errado

Comentário:

Os adjetivos utilizados com os pronomes de tratamento ajustam-se ao **gênero biológico** da pessoa referida. Por exemplo, na frase "*Vossa Excelência pareceu extremamente interessada no assunto*", o adjetivo concorda com o gênero feminino.

22. O Ofício Circular ocorre quando um órgão envia o mesmo expediente para mais de um órgão receptor, caso em que a sigla na epígrafe será apenas do órgão remetente.

Gabarito: Certo

Comentário:

Isso mesmo. De acordo com o Manual de Redação da Presidência da República, o **OFÍCIO CIRCULAR** ocorre quando um órgão envia o mesmo expediente **para mais de um órgão receptor**. Nesse caso, a sigla na epígrafe será apenas do órgão remetente.

Além disso, esses documentos oficiais podem ser identificados de acordo com algumas possíveis variações:

a) [NOME DO EXPEDIENTE] + CIRCULAR: quando um órgão envia o mesmo expediente para mais de um órgão receptor. A sigla na epígrafe será apenas do órgão remetente.

b) [NOME DO EXPEDIENTE] + CONJUNTO: quando mais de um órgão envia, conjuntamente, o mesmo expediente para um único órgão receptor. As siglas dos órgãos remetentes constarão na epígrafe.

98276239072 - FABIANO CARBONELL DA SILVA

c) [NOME DO EXPEDIENTE] + CONJUNTO CIRCULAR: quando **mais de um órgão envia**, conjuntamente, o **mesmo expediente para mais de um órgão receptor**. As siglas dos órgãos remetentes constarão na epígrafe.

23. O *email* deve sempre ser considerado um documento oficial.

Gabarito: Errado

Comentário:

De acordo com o Manual de Redação da Presidência da República (2018), a utilização do **Correio Eletrônico** (*e-mail*) para a comunicação tornou-se prática comum, não só em âmbito privado, mas também na administração pública. O termo *e-mail* pode ser empregado com três sentidos. Dependendo do contexto, pode significar **gênero textual**, endereço eletrônico ou **sistema de transmissão de mensagem eletrônica**. Como gênero textual, o *e-mail* **pode** (o erro do item está em utilizar o termo "**deve**", por isso a questão está incorreta) ser considerado um **documento oficial**, assim como o ofício.

Portanto, deve-se evitar o uso de linguagem incompatível com uma comunicação oficial. Como endereço eletrônico utilizado pelos servidores públicos, o *e-mail* deve ser oficial, utilizando-se a extensão "**.gov.br**", por exemplo. Como sistema de transmissão de mensagens eletrônicas, por seu baixo custo e celeridade, transformou-se na principal forma de envio e recebimento de documentos na administração pública.

24. Apesar de não haver definição de padronização da mensagem comunicada por *email*, existe recomendação em relação ao tipo de fonte a ser empregado e ao seu tamanho.

Gabarito: Certo

Comentário:

Isso mesmo. Embora o Correio eletrônico (e-mail) não exija uma padronização em termos de formatação, recomenda-se a adoção de tipo de fonte, tamanho e cor: **Calibri ou Carlito, tamanho 12, cor preta**.

DIREITO ADMINISTRATIVO

A respeito de modalidades licitatórias, julgue o item subsequente.

25. O diálogo competitivo consiste no conjunto de procedimentos para realização, mediante contratação direta ou licitação, de registro formal de preços relativos a prestação de serviços, a obras e a aquisição e locação de bens para contratações futuras.

Gabarito: Errado

Comentário: A questão menciona o conceito (incompleto) do sistema de registros de preços. Vejamos nos termos da *Lei nº 14.133/2021, Art. 2º Esta Lei aplica-se a:*

XLII - diálogo competitivo: modalidade de licitação para contratação de obras, serviços e compras em que a Administração Pública realiza diálogos com licitantes previamente selecionados mediante critérios objetivos, com o intuito de desenvolver uma ou mais alternativas capazes de atender às suas necessidades, devendo os licitantes apresentar proposta final após o encerramento dos diálogos;

XLV - sistema de registro de preços: conjunto de procedimentos para realização, mediante contratação direta ou licitação nas modalidades pregão ou concorrência, de registro formal de preços relativos a prestação de serviços, a obras e a aquisição e locação de bens para contratações futuras;

Com relação à responsabilidade civil do Estado, julgue o item subsequente.

98276239072 - FABIANO CARBONELL DA SILVA

26. A responsabilidade civil do agente público prescinde da existência de dolo ou culpa, ao passo que a configuração da responsabilidade do Estado requer a presença desses elementos subjetivos.

Gabarito: Errado

Comentário: Apesar de não ser de suma importância para resolução do item, devemos ficar atentos ao fato de que "prescindir" é sinônimo de "dispensar".

É a responsabilidade civil do Estado que dispensa a existência de dolo ou culpa (é uma responsabilidade objetiva, como regra), ao passo que a configuração da responsabilidade do agente público requer a presença desses elementos subjetivos é uma responsabilidade subjetiva).

Portanto, diferentemente do Estado (que responde objetivamente), o agente público causador do dano somente responderá de maneira subjetiva perante o Estado, isto é, apenas quando se comprovar que o agente agiu com dolo ou culpa

Com fundamento na Lei n.º 8.112/1990, julgue o item a seguir.

27. Ao servidor ocupante de cargo em comissão é permitido ser nomeado para ter exercício, interinamente, em outro cargo de confiança, hipótese em que deverá optar pela remuneração de um deles durante o período da interinidade.

Gabarito: Certo

Comentário: Nos termos da *Lei n.º 8.112/1990, Art. 9º Parágrafo único. O servidor ocupante de cargo em comissão ou de natureza especial poderá ser nomeado para ter exercício, interinamente, em outro cargo de confiança, sem prejuízo das atribuições do que atualmente ocupa, hipótese em que deverá optar pela remuneração de um deles durante o período da interinidade.*

DIREITO CONSTITUCIONAL

À luz da Constituição Federal de 1988, julgue os itens que se seguem, relativos ao Poder Executivo e aos direitos e garantias fundamentais.

28. A forma de governo adotada no Brasil é o presidencialismo.

Gabarito: Errado

Comentário: O presidencialismo é o sistema de governo.

Formas de governo: monarquia e república.

A monarquia possui as seguintes características básicas: vitaliciedade (o monarca governa enquanto viver ou enquanto tiver condições para fazê-lo), hereditariedade (a sucessão do soberano é feita pelos seus herdeiros) e irresponsabilidade (não se atribui responsabilidade política ao monarca).

A república, por sua vez, reúne as seguintes características fundamentais: temporariedade (chefe de governo cumpre um mandato temporário), eletividade (há eleição para a escolha do chefe de governo) e responsabilidade (chefe de governo deve prestar contas).

O Brasil é uma república federativa, em que sua forma de Estado é a federação e a sua forma de governo é a republicana.

O sistema de governo adotado por um Estado é o modo como se dá a relação entre os Poderes, notadamente entre o Poder Executivo e o Poder Legislativo. Não se confunde com forma de governo (que pode ser República ou Monarquia), tampouco com forma de Estado (Estado unitário ou Estado federal).

Há dois sistemas de governo amplamente utilizados mundo afora: presidencialismo e o parlamentarismo. Como exemplo de países que adotam o presidencialismo, citamos o Brasil e os EUA. Por outro lado, a Inglaterra é um exemplo de país que adota o parlamentarismo como sistema de governo.

98276239072 - FABIANO CARBONELL DA SILVA

República Federativa do Brasil:

- Forma de estado = Federação
- Regime político = Democracia
- Forma de governo = República
- Sistema de governo = Presidencialismo

29. O ingresso em uma casa sem a permissão do morador só é permitido em situações específicas como as de flagrante delito, desastre, prestação de socorro ou, durante o dia, mediante determinação judicial.

Gabarito: Certo

Comentário: Nos termos da *CF/88, Art. 5º Todos são iguais perante a lei, sem distinção de qualquer natureza, garantindo-se aos brasileiros e aos estrangeiros residentes no País a inviolabilidade do direito à vida, à liberdade, à igualdade, à segurança e à propriedade, nos termos seguintes:*

XI - a casa é asilo inviolável do indivíduo, ninguém nela podendo penetrar sem consentimento do morador, salvo em caso de flagrante delito ou desastre, ou para prestar socorro, ou, durante o dia, por determinação judicial;

Assim, o ingresso na "casa" de um indivíduo poderá ocorrer nas seguintes situações:

- Com o consentimento do morador.
- Sem o consentimento do morador, sob ordem judicial, apenas durante o dia. Perceba que, mesmo com ordem judicial, não é possível o ingresso na casa do indivíduo durante o período noturno.
- A qualquer hora, sem consentimento do indivíduo, em caso de flagrante delito ou desastre, ou, ainda, para prestar socorro.

Em resumo, a regra geral é que somente se pode ingressar na casa do indivíduo com o seu consentimento. No entanto, será possível penetrar na casa do indivíduo mesmo sem o consentimento, desde que amparado por ordem judicial (durante o dia) ou, a qualquer tempo, em caso de flagrante delito ou desastre, ou para prestar socorro.

30. O racismo e a ação de grupos armados, civis ou militares, contra a ordem constitucional constituem crimes inafiançáveis e imprescritíveis.

Gabarito: Certo

Comentário: Nos termos da *CF/88, Art. 5º Todos são iguais perante a lei, sem distinção de qualquer natureza, garantindo-se aos brasileiros e aos estrangeiros residentes no País a inviolabilidade do direito à vida, à liberdade, à igualdade, à segurança e à propriedade, nos termos seguintes:*

XLII - a prática do racismo constitui crime inafiançável e imprescritível, sujeito à pena de reclusão, nos termos da lei;

XLIII - a lei considerará crimes inafiançáveis e insuscetíveis de graça ou anistia a prática da tortura , o tráfico ilícito de entorpecentes e drogas afins, o terrorismo e os definidos como crimes hediondos, por eles respondendo os mandantes, os executores e os que, podendo evitá-los, se omitirem;

XLIV - constitui crime inafiançável e imprescritível a ação de grupos armados, civis ou militares, contra a ordem constitucional e o Estado Democrático;

DIREITO PENAL E PROCESSUAL PENAL

Em relação aos crimes contra a pessoa e contra a administração pública, julgue os itens subsequentes, de acordo com o Código Penal.

31. Ronaldo, utilizando-se de arma de fogo de uso restrito, matou o seu desafeto. Nesse cenário, o delito será tipificado como homicídio qualificado, com todos os seus consectários legais.

Gabarito: Certo

Comentário: Recentemente, foi incluído o inciso VIII ao art. 121, §2º do CP 15, criando mais uma

98276239072 - FABIANO CARBONELL DA SILVA

qualificadora, que será aplicável quando o homicídio for praticado com emprego de arma de fogo de uso restrito ou proibido.

Conforme o *CP, Art. 121. Matar alguém:*

Pena - reclusão, de seis a vinte anos.

§ 2° Se o homicídio é cometido:

VIII - com emprego de arma de fogo de uso restrito ou proibido:

Pena - reclusão, de doze a trinta anos.

Lembrando que o homicídio não é qualificado quando é cometido com arma de fogo de uso permitido.

32. Para satisfazer interesse pessoal, Murilo, servidor público federal, deixou indevidamente de praticar ato de ofício. Nessa situação, Murilo responderá, em tese, pelo crime de corrupção passiva.

Gabarito: Errado

Comentário: Responderá por crime de prevaricação. O crime de prevaricação é tipificado no art. 319 do CP, que diz:

Art. 319 - Retardar ou deixar de praticar, indevidamente, ato de ofício, ou praticá-lo contra disposição expressa de lei, para satisfazer interesse ou sentimento pessoal:

Pena - detenção, de três meses a um ano, e multa.

Corrupção passiva: Art. 317 - Solicitar ou receber, para si ou para outrem, direta ou indiretamente, ainda que fora da função ou antes de assumi-la, mas em razão dela, vantagem indevida, ou aceitar promessa de tal vantagem:

Pena – reclusão, de 2 (dois) a 12 (doze) anos, e multa.

Lembrando:

- favorzinho gratuito = corrupção passiva privilegiada;
- satisfação de interesse próprio = prevaricação.

Em relação à prisão em flagrante, julgue o item que se segue.

33. As autoridades policiais e qualquer do povo devem prender uma pessoa que esteja cometendo um roubo e em flagrante delito.

Gabarito: Errado

Comentário: *CPP, Art. 301. Qualquer do povo poderá e as autoridades policiais e seus agentes deverão prender quem quer que seja encontrado em flagrante delito.*

Qualquer do povo pode prender uma pessoa que esteja praticando um fato criminoso (flagrante facultativo).

Porém, a autoridade policial e seus agentes devem efetuar a prisão de quem quer que seja encontrado em situação de flagrante delito (flagrante obrigatório).

LEGISLAÇÃO ESPECIAL

Com base na Lei nº 9.605/1998, que dispõe sobre as sanções penais e administrativas derivadas de condutas e atividades lesivas ao meio ambiente, julgue o item que se segue.

34. A responsabilidade das pessoas físicas, quando autoras, co-autoras ou partícipes do mesmo fato, não é excluída pela responsabilidade das pessoas jurídicas.

Gabarito: Certo

Comentário:

Conforme a *Lei nº 9.605/1998, Art. 3º As pessoas jurídicas serão responsabilizadas administrativa, civil e penalmente conforme o disposto nesta Lei, nos casos em que a infração seja cometida por decisão de seu representante legal ou contratual, ou de seu órgão colegiado, no interesse ou benefício da sua entidade.*

Parágrafo único. A responsabilidade das pessoas jurídicas não exclui a das pessoas físicas, autoras, co-autoras ou partícipes do mesmo fato.

98276239072 - FABIANO CARBONELL DA SILVA

Com base no que dispõe as Leis n.º 10.446/2002 e nº 9.455/1997, julgue os itens subsequentes.

35. A investigação conduzida pelo Departamento de Polícia Federal, em caso de sequestro do titular de uma secretaria estadual com repercussão interestadual ou internacional, que exija repressão uniforme e o crime seja cometido em razão da função pública ou por motivação política, independe de autorização.

Gabarito: Certo

Comentário: *Lei n.º 10.446/2002, Art. 1º Na forma do inciso I do § 1º do art. 144 da Constituição, quando houver repercussão interestadual ou internacional que exija repressão uniforme, poderá o Departamento de Polícia Federal do Ministério da Justiça, sem prejuízo da responsabilidade dos órgãos de segurança pública arrolados no art. 144 da Constituição Federal, em especial das Polícias Militares e Civis dos Estados, proceder à investigação, dentre outras, das seguintes infrações penais:*

I – sequestro, cárcere privado e extorsão mediante sequestro (arts. 148 e 159 do Código Penal), se o agente foi impelido por motivação política ou quando praticado em razão da função pública exercida pela vítima;

Parágrafo único. Atendidos os pressupostos do caput, o Departamento de Polícia Federal procederá à apuração de outros casos, desde que tal providência seja autorizada ou determinada pelo Ministro de Estado da Justiça.

Dessa forma, em sentido contrário, entende-se que em outros casos diferentes, haverá a necessidade de autorização. Ou seja, para o caso proposto na questão, independe de autorização.

Sendo mais claro:

As infrações penais não especificadas entre os incisos do § 1º da Lei 10.446/02, que repercutam interestadual ou internacionalmente e exijam repressão uniforme, dependerão de autorização ou determinação do Ministro de Estado da Justiça, para que sejam investigadas pelo Departamento de Polícia Federal.

Já as infrações penais especificadas nos referidos incisos (é o caso da questão) poderão ser investigadas pelo Departamento de Polícia Federal, independentemente de autorização ou determinação do Ministro de Estado da Justiça.

36. O disposto na Lei que define o delito de tortura é aplicável mesmo quando o crime não tenha sido cometido em território nacional, desde que a vítima seja brasileira.

Gabarito: Errado

Comentário: A aplicação da lei brasileira em crimes de tortura cometidos fora do território nacional se dá em duas situações distintas:

- Sendo a vítima brasileira: A nacionalidade da vítima é um critério para a aplicação da lei brasileira.
- Encontrando-se o agente em local sob jurisdição brasileira: O local onde o agente se encontra também é um critério relevante.

Lei nº 9.455/1997, Art. 2º O disposto nesta Lei aplica-se ainda quando o crime não tenha sido cometido em território nacional, sendo a vítima brasileira ou encontrando-se o agente em local sob jurisdição brasileira.

ESTATÍSTICA

Situação hipotética:

Em acompanhamento diário realizado no "Comunica PF", verifica-se que, em uma amostra de 64 ligações, 6,25% delas são "trotes". Esse acompanhamento segue distribuição de Poisson, cuja função de probabilidade é expressa por:

$$P(X = k) = \frac{e^{-h} * h^k}{k!}$$

Em que

- K = 0, 1, 2...

98276239072 - FABIANO CARBONELL DA SILVA

- h = parâmetro.

Dados: $e^{-2} = 0,13$;

Com base nessas informações, julgue os itens **37 a 39** seguintes.

37. A distribuição de Poisson é um exemplo de modelo de distribuição discreta de probabilidade.

Gabarito: Certo

Comentário: Em resumo, as Variáveis Aleatórias Discretas e Contínuas possuem as seguintes características:

Variáveis Aleatórias Discretas	• Quantidade de valores possíveis é enumerável (finito ou não) • Atribuímos **probabilidades a resultados específicos**
Variáveis Aleatórias Contínuas	• Assumem qualquer valor dentro de um intervalo • Os resultados possíveis são infinitos e não enumeráveis • Não atribuímos probabilidade a resultados específicos, apenas a intervalos

A Distribuição de Poisson descreve a probabilidade de ocorrências aleatórias em determinado intervalo, como o tempo, mas com uma taxa média constante. Dessa forma, podemos verificar que a distribuição de Poisson é um exemplo de distribuição discreta de probabilidade. O item está **CERTO**.

38. Para a situação hipotética apresentada, o parâmetro de distribuição de Poisson h é igual a 4, que equivale à variância da distribuição.

Gabarito: Certo

Comentário: Na distribuição de Poisson, denotamos a média por h, que é o único parâmetro da distribuição. Assim, calculamos esse parâmetro na distribuição de Poisson da seguinte forma:

$$\lambda = n.p$$

Para o cálculo do parâmetro h, temos o seguinte:

- n = 64 (amostra de ligações);
- p = 6,25% = 0,0625 (percentual de trotes)

Substituindo:

$$h = 64\ x\ 0,0625$$

$$h = 4$$

Além disso, na distribuição de Poisson, temos:

ESQUEMATIZANDO

Distribuição de Poisson (λ)

Aproximação da Distribuição Binomial para $n \to \infty$ e $p \to 0$

$$P(X = k) = \frac{e^{-\lambda}.\lambda^k}{k!}$$

Esperança: $E(X) = \lambda$; Variância: $V(X) = \lambda$

Portanto, temos que a **variância V(x)** equivale a **h = 4.** Dessa forma, o item está **CERTO**.

39. A probabilidade de que o "comunica PF" receba mais de 2 "trotes" em um dia é inferior a 75%.

Gabarito: Errado

Comentário: Para calcularmos a probabilidade de receber mais de 2 trotes, é mais tranquilo calcularmos a probabilidade complementar, ou seja, a probabilidade de que o número de trotes seja menor ou igual a 2 e subtrair de 1. Vejamos:

$$P(X > 2) = 1 - P(X \leq 2)$$

Em que:

$$P(X \leq 2) = P(X = 0) + P(X = 1) + P(X = 2)$$

$$P(X \leq 2) = \frac{e^{-4}*4^0}{0!} + \frac{e^{-4}*4^1}{1!} + \frac{e^{-4}*4^2}{2!}$$

$$P(X \leq 2) = \frac{0,13^2*1}{1} + \frac{0,13^2*4}{1} + \frac{0,13^2*16}{2}$$

$$P(X \leq 2) = \frac{0,0169*1}{1} + \frac{0,0169*4}{1} + \frac{0,0169*16}{2}$$

$$P(X \leq 2) = 0,0169 + 0,0169 * 4 + 0,0169 * 8$$

$$P(X \leq 2) = 0,0169 * 13$$

$$P(X \leq 2) = 0,2197$$

Calculando $P(X > 2)$:

$$P(X > 2) = 1 - P(X \leq 2)$$

$$P(X > 2) = 1 - 0,2197$$

$$P(X > 2) = 0,7803 \; ou \; 78,03\%$$

Dessa forma, temos o item como **ERRADO**.

Situação hipotética:

Uma concessionária deseja verificar se o consumo de gasolina de três diferentes tipos de veículos (A, B e C), cujos valores de venda são similares, varia entre diferentes condutores. Para isso, a concessionária realiza um experimento com três tipos de veículos, sendo cada veículo utilizado por três condutores distintos, em um mesmo circuito padrão. Após cada condutor percorrer uma volta completa no circuito com o veículo, o consumo de gasolina de cada veículo é medido, conforme mostrado na tabela abaixo:

Veículo	Condutor 1	Condutor 2	Condutor 3
A	10 km/L	8 km/L	9 km/L
B	9 km/L	9 km/L	12 km/L
C	6 km/L	9 km/L	9 km/L

Com base nessa situação, deseja-se testar as seguintes hipóteses:

- **Hipótese nula (H_0):** Não há diferença significativa no consumo de gasolina entre os veículos A, B e C.
- **Hipótese alternativa (H_1):** Existe uma diferença significativa no consumo de gasolina entre os veículos A, B e C.

A partir dessas informações, julgue os itens 40 a 43, em relação à análise de variância (ANOVA).

40. A Análise de Variância é um teste de hipóteses com o objetivo de comparar as médias (de três ou mais grupos). As suas premissas são independência (os erros são independentes), heteroscedasticidade (variâncias dos erros são diferentes) e normalidade (os erros seguem distribuição normal).

Gabarito: Errado

Comentário: A análise de variância simples (ou ANOVA de um fator) é um teste de hipóteses com o objetivo de comparar as médias de três ou mais grupos, com o objetivo de concluir se as médias são iguais ou se existe diferença significativa em relação a alguma delas.

De acordo com **ESTRATÉGIA (2025):**

"Para aplicar o teste, precisamos nos atentar aos seus pressupostos referentes aos erros:

- ***Independência**: os erros são independentes;*
- ***Normalidade**: os erros seguem distribuição normal (com média 0);*
- ***Homoscedasticidade**: as variâncias dos erros são **iguais**."*

Portanto, verificamos que o erro da assertiva é afirmar que a variância dos erros na ANOVA são diferentes, quando na verdade são iguais. Temos o item como **ERRADO**.

41. O número de graus de liberdade do modelo é igual a 2. Por sua vez, o número de graus de liberdade do erro é igual a 6.

Gabarito: Certo

98276239072 - FABIANO CARBONELL DA SILVA

Comentário: Para o cálculo dos graus de liberdade, temos:

O número total de graus de liberdade equivale ao número total de observações, menos 1:

GLtotal = k x n – 1 = 3 x 3 – 1 = 8

O número de graus de liberdade do modelo equivale ao número de tratamentos, menos 1:

GLtrat = k – 1 = 3 – 1 = 2

O número de graus de liberdade do erro é:

GLerro = k x (n – 1) = 3 x (3 – 1) = 6

Observe que a soma dos graus de liberdade do tratamento e do erro equivale à soma do grau de liberdade Total.

Dessa forma, o item está **CERTO**.

42. A estatística do teste F é superior a 2.

Gabarito: Errado

Comentário: Para esse tipo de questão, podemos seguir o seguinte passo a passo:

1° Preencher a tabela com valores de soma, média e diferença de média e média geral:

Veículo	Condutor 1	Condutor 2	Condutor 3	Soma xi	Média $\overline{Xi}$	$\overline{Xi}$ - $\overline{X}$
A	10 km/L	8 km/L	9 km/L	27	9	9-9= 0
B	9 km/L	9 km/L	12 km/L	30	10	10-9 = 1
C	6 km/L	9 km/L	9 km/L	24	8	8-9 = -1
Total				81		

OBS: $\overline{X} = 9$, pois (soma total/total de análises) = 81/9 = 9.

2°Calcular a soma dos quadrados de tratamento:

$$SQtrat = n.\sum_{i=1}^{k}(\overline{Xi} - \overline{X})^2$$

Sabendo que n = 3 condutores:

$$SQtrat = 3.\sum_{i=1}^{3}(\overline{Xi} - \overline{X})^2 = 3.[(0)^2 + (1)^2 + (-1)^2$$

$$SQtrat = 3\,x\,2$$

$$SQtrat = 6$$

3° Calcular a soma dos quadrados dos erros:

Para isso, precisamos das diferenças entre o consumo de cada veículo e a mediado grupo:

Veículo	Condutor 1	Condutor 2	Condutor 3	Média $\overline{Xi}$
A	10 – 9 = 1	8 – 9 = -1	9 – 9 = 0	9
B	9 – 10 = -1	9 – 10 = -1	12 – 10 = 2	10
C	6 – 8 = -2	9 – 8 = 1	9 – 8 = 1	8
Total				

A SQerro consiste na soma de todos esses valores (em vermelho) elevados ao quadrado:

SQerro = $1^2 + (-1)^2 + (0)^2 + (-1)^2 + (-1)^2 + (2)^2 + (-2)^2 + (1)^2 + (1)^2$

SQerro = 14

4° Calcular a soma total dos quadrados:

Nesse caso, considera-se a soma dos dois resultados anteriores:

SQtotal = SQtrat + SQerro

SQtotal = 6 + 14

SQtotal = 20

5° Calcular os graus de liberdade.

O número total de graus de liberdade equivale ao número total de observações, menos 1:

GLtotal = k x n – 1 = 3 x 3 – 1 = 8

O número de graus de liberdade do modelo equivale ao número de tratamentos, menos 1:

GLtrat = k – 1 = 3 – 1 = 2

O número de graus de liberdade do erro é:

GLerro = k x (n – 1) = 3 x (3 – 1) = 6

Observe que a soma dos graus de liberdade do tratamento e do erro equivale à soma do grau de liberdade Total.

6° Calcular os quadrados médios:

O quadrado médio do tratamento será:

$$QMtrat = \frac{SQtrat}{GLtrat} = \frac{6}{2} = 3$$

O quadrado médio do erro será:

$$QMerro = \frac{SQerro}{GLerro} = \frac{14}{6} = \frac{7}{3}$$

7° Realizar a análise junto à Estatística F:

$$F = \frac{QMtrat}{QMerro} = \frac{3}{\frac{7}{3}} = \frac{9}{7} = 1,28$$

Como a estatística do teste F é igual a 1,28, temos o item como **ERRADO**.

43. A estimativa da variância do erro é inferior a 2,50.

Gabarito: Certo

Comentário: Vejamos o seguinte:

TOME NOTA!

Para obter a variância do erro (aquela que é **constante** como premissa do modelo), utilizamos o **quadrado médio do erro**:

$$QM_{Erro} = \frac{SQ_{Erro}}{GL_{Erro}}$$

A **esperança do quadrado médio** corresponde à variância do erro:

$$\sigma^2 = E(QM_{Erro})$$

Conforme vimos anteriormente:

$$QMerro = \frac{SQerro}{GLerro} = \frac{14}{6} = \frac{7}{3} = 2,33$$

Logo, temos o item como **CERTO**.

Situação hipotética:

Segundo a organização estadual dos cafeicultores, o peso diário de café (T, em toneladas) colhido nas propriedades do estado Alpha, por seus produtores, segue uma distribuição normal com média igual a 7,75 toneladas e desvio padrão igual a 1,5 toneladas.

Considerando que um teste de hipóteses é realizado para verificar se o peso médio de café colhido é 7,75 toneladas, com um nível de significância de 5%, e que a hipótese nula é H0: μ =7,75 toneladas e a hipótese alternativa é H1: μ ≠ 7,75 toneladas.

A partir dessas informações e considerando que Z representa uma distribuição normal padrão, em que P(1,28 ≤ z) = 0,90; P (Z ≤ 1,5) = 0,933 e P (Z ≤ 2) = 0,977, julgue os itens **44 a 46** subsecutivos.

44. O resultado de P(X > 10 toneladas) está entre 0,03 e 0,09.

Gabarito: Certo

Comentário: Quando a população tiver variância conhecida σ^2 e distribuição normal, a média amostral também terá distribuição normal. Se a população apresentar outra distribuição, mas o tamanho da amostra for suficientemente grande, também podemos aproximar a distribuição da média amostral a uma normal (teorema central do limite). Assim, utilizamos a seguinte transformação entre a normal e a normal padrão:

$$z = \frac{valor\ na\ distribuição - média\ da\ distribuição}{desvio\ padrão\ da\ distribuição}$$

Os testes que levam em consideração uma distribuição normal (ainda que seja por aproximação) são chamados Testes Z.

A questão informou o seguinte:

- Valor na distribuição = 10;
- Média na distribuição = 7,75;
- Desvio padrão = 1,5

Substituindo:

$$z = \frac{10-7,75}{1,5} = \frac{2,25}{1,5} = 1,5$$

Conforme vimos, P (Z ≤ 1,5) = 0,933, teremos que **P (Z ≥ 1,5) = 1 – 0,933 = 0,067.**

Portanto, o item está **CERTO**, pois o resultado está entre 0,03 e 0,09.

45. Conclui-se que 9,67 toneladas é o peso diário de café correspondente ao 90° percentil da distribuição.

Gabarito: Certo

Comentário: Sabemos que para 0,90, temos z = 1,28. Logo:

$$1,28 = \frac{X-7,75}{1,5}$$

$$X = 1,28 * 1,5 + 7,75$$

$$X = 9,67\ toneladas$$

Portanto, o item está **CERTO**.

46. O erro tipo I para este teste é a probabilidade de não rejeitar a hipótese nula H0, mesmo quando o peso médio de café é, na verdade, superior a 8,5 toneladas.

Gabarito: Errado

Comentário: Sabemos que:

Erro tipo I (probabilidade α): **rejeitar** H_0 dado que H_0 é **verdadeira**

Erro tipo II (probabilidade β): **não rejeitar** H_0 dado que H_0 é **falsa**

A assertiva trouxe a indicação do **erro tipo II.** Portanto, o item está **ERRADO**.

Situação hipotética:

Em um estudo de regressão linear simples, desenvolvido pelo departamento de Estatística da Universidade Federal de Brasília, realizou-se o ajuste de uma reta de regressão para prever o valor da variável Y a partir da variável X, utilizando o método dos mínimos quadrados. Nesse estudo, obteve-se coeficiente de correlação amostral entre X e Y igual a 0,36.

Por fim, o estudo forneceu ainda as seguintes informações sobre a amostra:

- n = 30;
- $\sigma_x = 4$
- $\sigma_y = 3$

Julgue os itens **47 e 48** a seguir.

47. No caso hipotético apresentado, o coeficiente de determinação é 0,6.

Gabarito: Errado

Comentário: Sabemos que o coeficiente de determinação (R^2) é o quadrado do coeficiente de correlação (R), dessa forma:

- $R^2 = 0,36^2$
- **$R^2 = 0,1296$**

Portanto, o item está **ERRADO**.

OBS: Cuidado para não confundir a relação entre o coeficiente de correlação e o coeficiente de determinação, pois uma inversão entre os conceitos poderia levar o aluno a marcar o item como certo.

48. A estimativa do coeficiente b é igual a 0,27.

Gabarito: Certo

Comentário: Para encontrar a estimativa do coeficiente $\hat{b}$ na regressão linear simples, podemos usar a fórmula:

$$b = r\ x \frac{\sigma_y}{\sigma_x}$$

A questão forneceu:

- r = 0,36;
- $\sigma_y = 3$
- $\sigma_x = 4$

Substituindo:

$$b = 0,36\ x \frac{3}{4}$$

$$b = 0,27$$

Dessa forma, temos o item como **CERTO**.

RACIOCÍNIO LÓGICO

Considere o seguinte argumento:

P1: Se a operação deflagrada foi um sucesso, então os agentes estavam bem treinados.

P2: Os agentes estavam bem treinados somente se os instrutores tinham boa didática.

P3: Como os instrutores não tinham boa didática, a equipe de apoio não chegou a tempo.

P4: A operação deflagrada foi um sucesso e a população local elogiou a atuação da polícia.

C: A equipe de apoio chegou a tempo.

Considerando um argumento formado pelas proposições precedentes, em que C é a conclusão, e P1 a P4 são as premissas, julgue os **itens 49 a 53** a seguir.

49. O argumento apresentado é válido.

Gabarito: Errado

Comentário: Diversos métodos são possíveis de utilizar para verificarmos a validade do argumento. No presente momento, vamos utilizar o método da conclusão falsa. Basicamente, devemos saber que:

*"Se é possível fazer com que todas as premissas sejam verdadeiras mantendo a conclusão falsa, o argumento é **inválido**. Se não for possível fazer com que todas as premissas sejam verdadeiras mantendo a conclusão falsa, o argumento é válido."*

Vamos, então, analisar cada premissa do argumento, tentando fazer com que a premissa seja verdadeira e a conclusão não seja necessariamente verdadeira. Vejamos:

OBS: Já sabemos pela P4 que a operação deflagrada foi um sucesso, pois estamos tratando de uma conjunção.

P1: Se a operação deflagrada foi um sucesso (V), então os agentes estavam bem treinados. (V)

Aqui tivemos que concluir também que os agentes estavam bem treinados como verdadeira, pois V -> V = V.

P2: Os agentes estavam bem treinados (V) somente se os instrutores tinham boa didática. (V)

Mesma análise anterior para a questão de os instrutores terem boa didática ser verdadeira.

P3: Como os instrutores não tinham boa didática (F), a equipe de apoio não chegou a tempo. (?)

Perceba que já descobrimos que os instrutores tinham boa didática, logo, o antecedente dessa condicional é falsa. No entanto, não podemos concluir nada sobre o consequente, pois ele pode ter valor V ou F e ainda assim a premissa ser verdadeira.

P4: A operação deflagrada foi um sucesso (V) e a população local elogiou a atuação da polícia. (V)

Aqui é uma conjunção, logo para ser verdadeira devemos ter V e V.

C: A equipe de apoio chegou a tempo.

Note que temos uma situação em que é possível termos todas as premissas verdadeiras e a conclusão falsa. Por exemplo, se afirmarmos que "a equipe de apoio não chegou a tempo", teremos a P3 como F -> V = V e teremos a conclusão falsa.

Dessa forma, verificamos que o argumento é **INVÁLIDO**.

50. O número de linhas da tabela verdade da proposição associada ao argumento é inferior a 64.

98276239072 - FABIANO CARBONELL DA SILVA

Gabarito: Certo

Comentário: Temos as seguintes proposições simples no argumento:

- A operação deflagrada foi um sucesso;
- Os agentes estavam bem treinados;
- Os instrutores tinham boa didática;
- A equipe de apoio não chegou a tempo;
- A população local elogiou a atuação da polícia.

O número de linhas da tabela-verdade é definido por 2^n, em que n representa o número de proposições simples distintas. Conforme vimos, temos **n = 5.**

$$Total\ de\ linhas = 2^5 = 32\ linhas$$

Logo, o item está **CERTO**.

51. A proposição P2 é equivalente a "Os agentes não estavam bem treinados ou os instrutores tinham boa didática".

Gabarito: Certo

Comentário: A proposição P2 apresentada foi:

P2: Os agentes estavam bem treinados somente se os instrutores tinham boa didática.

Perceberam que estamos diante de uma condicional? O conectivo "somente se" remete a uma condicional. Dessa forma, podemos reescrever a proposição P2 da seguinte forma:

"Se os agentes estavam bem treinados, então os instrutores tinham boa didática".

Utilizando a equivalência com a disjunção inclusiva, devemos NEgar o 1° termo e MAnter o 2° termo, substituindo a condicional pela disjunção inclusiva.

Os agentes não estavam bem treinados ou os instrutores tinham boa didática.

Portanto, o item está **CERTO**.

OBS: Cuidado para não confundir o "somente se" (condicional) com o "se, e somente se" (bicondicional).

52. Há equivalência entre a proposição P3 e a proposição "É falso que os instrutores não tinham boa didática e a equipe de apoio chegou a tempo".

Gabarito: Certo

Comentário: O conectivo "como" representa uma condicional, dessa forma, a proposição P3 poderia ser reescrita por:

"Se os instrutores não tinham boa didática, então a equipe de apoio não chegou a tempo".

Por sua vez, quando a banca afirma que "É falso que", devemos realizar a negação de toda a afirmação apresentada. Dessa forma, a negação de "os instrutores não tinham boa didática e a equipe de apoio chegou a tempo" será:

"Se os instrutores não tinham boa didática, então a equipe de apoio não chegou a tempo".

Perceba que MAntemos o 1° termo e NEgamos o 2° termo, substituindo a conjunção pela condicional.

Como verificamos que as proposições apresentadas são iguais, temos que P3 equivale, de fato, à proposição apresentada na assertiva. O item está **CERTO**.

53. Uma negação correta de P4 é dada por "A população local não elogiou a atuação da polícia ou a operação deflagrada não foi um sucesso".

Gabarito: Certo

Comentário: A negação da conjunção será feita com a Lei de Morgan, em que negamos ambos os termos e substituímos a conjunção pela disjunção:

"A operação deflagrada não foi um sucesso ou a população local não elogiou a atuação da polícia."

Além disso, temos que a disjunção possui a propriedade comutativa, ou seja, A v B ≡ B v A. Reescrevendo:

"A população local não elogiou a atuação da polícia ou a operação deflagrada não foi um sucesso."

Portanto, o item está **CERTO**.

98276239072 - FABIANO CARBONELL DA SILVA

Situação hipotética:

No dia 01, determinado grupo de 8 jovens decidiu ir a um bar local. Chegando lá, os 8 jovens se assentaram em volta de uma mesa circular.

No dia seguinte, dia 02, foi proposto de o grupo de jovens ir ao cinema. No entanto, somente 7 jovens puderam ir assistir ao filme de lançamento. Eles, então, se assentaram em uma fileira de 7 cadeiras alinhadas.

Com base na situação hipotética apresentada, julgue os itens **54 e 55** a seguir.

54. O número de maneiras distintas que o grupo de jovens tem para se assentar ao redor da mesa circular no dia 01 é superior a 5.500.

Gabarito: Errado

Comentário: Quando estamos falando de permutação circular, temos a seguinte condição:

- Pn = (n-1)!

Como temos n = 8, teremos:

- P8 = (8-1)!
- P8 = 7!
- P8 = **5040 possibilidades distintas**.

Dessa forma, o item está **ERRADO**.

55. O número de maneiras distintas que os grupos de jovens dispõem para se assentar nos dias 01 e 02 são equivalentes.

Gabarito: Certo

Comentário: Analisando o dia 02, temos 7 jovens para se assentarem em uma fileira alinhada, logo, teremos uma permutação simples:

- P7 = 7!
- **P7 = 5040.**

Portanto, temos que o item está **CERTO**, pois nos dias 01 e 02 temos equivalência entre o número de possibilidades distintas que esses jovens possuem para se assentarem.

Situação hipotética:

Um grupo de treinamento é composto por 3 agentes, 5 escrivães e 7 papiloscopistas. Sabe-se que:

- dos agentes, 2 são loiros e 1 é moreno;
- dos escrivães, 2 são loiros e 3 são morenos;
- dos papiloscopistas, 3 são loiros e 4 são morenos.

Com base na situação hipotética, julgue os itens **56 e 57** a seguir.

56. A probabilidade de, ao selecionarmos aleatoriamente uma pessoa desse grupo de treinamento, ela seja loira ou escrivã é superior a 65%.

Gabarito: Certo

Comentário: Para determinarmos a quantidade de pessoas loiras ou escrivãs, temos o seguinte:

- (Loiro ou escrivão) = (Loiro) + (Escrivão) – (Loiro e Escrivão)
- (Loiro ou escrivão) = (3 + 2 + 2) + (2 + 3) – (2)
- (Loiro ou escrivão) = 7 + 5 – 2
- (Loiro ou escrivão) = 10

Portanto, temos 10 possibilidades dentre os 15 totais. Sendo assim, a probabilidade será:

$$P = \frac{10}{15} = \frac{2}{3} > 65\%$$

Portanto, o item está **CERTO**.

57. Há menos de 600 possibilidades distintas de montar uma equipe de trabalho composta por 1 agente, 2 escrivães e 2 papiloscopistas, selecionando-se as pessoas dentre as que compõem o grupo de treinamento indicado.

Gabarito: Errado

Comentário: Vamos reforçar com esse modelo de questão, pois a banca CEBRASPE tem cobrado bastante esse entendimento sobre as combinações.

Vamos verificar as combinações possíveis para agentes, escrivães e papiloscopistas:

98276239072 - FABIANO CARBONELL DA SILVA

AGENTES:

Devemos selecionar 1 agente dentre os 3 disponíveis, logo:

$$C_1^3 = \frac{3!}{(3-1)!1!} = 3\ possibilidades$$

ESCRIVÃES:

Devemos selecionar 2 escrivães dentre os 5 disponíveis, logo:

$$C_2^5 = \frac{5!}{(5-2)!2!} = \frac{5\ x\ 4}{2} = 10\ possibilidades$$

PAPILOSCOPISTAS:

Devemos selecionar 2 papiloscopistas dentre os 7 disponíveis, logo:

$$C_2^7 = \frac{7!}{(7-2)!2!} = \frac{7\ x\ 6}{2} = 21\ possibilidades$$

Portanto, o número de maneiras distintas de formar essa comissão será dado pelo **produto** entre as combinações de agentes, escrivães e papiloscopistas, a saber:

$$T = C_1^3\ x\ C_2^5\ x\ C_2^7$$

$$T = 3\ x\ 10\ x\ 21 = 630\ possibilidades$$

Portanto, o item está **ERRADO**.

Julgue os itens subsequentes, relacionados a problemas aritméticos, geométricos e matriciais.

58. O produto entre uma matriz M 5x4 e uma matriz N 4x5 resultará em uma matriz P 4x4.

Gabarito: Errado

Comentário: Apesar de termos pouquíssimas questões do CEBRASPE cobrando o conhecimento de matrizes, como estamos em fase de aprendizado com simulados, vale a pena apresentarmos pelo menos algumas características e propriedades gerais relacionadas.

Uma das propriedades mais básicas e que podem ser objeto de cobrança em uma questão de C/E é a verificação do produto entre matrizes. Via de regra, temos a seguinte indicação:

Multiplicação de matrizes

1. *Verificar se o número de colunas da primeira matriz é igual ao número de linhas da segunda. Se essa igualdade não se verificar, não é possível realizar o produto das matrizes.*
2. *Obter o esquema geral da matriz-produto, que apresenta a seguinte dimensão:*

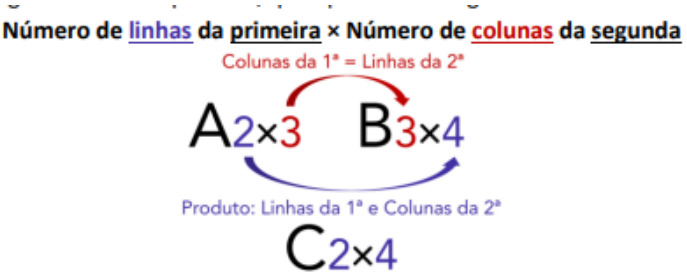

0. *Obter os elementos da matriz resultante a partir das linhas da primeira matriz e das colunas da segunda matriz."*

No caso em questão, temos o produto entre uma matriz 5 x 4 e uma matriz 4 x 5, o resultado será uma **matriz 5 x 5** (número de linhas de M e o número de colunas de N). Portanto, **o item está ERRADO.**

Referência:

ESTRATÉGIA CONCURSOS. Raciocínio lógico: Matrizes e determinantes. 2024.

–

98276239072 - FABIANO CARBONELL DA SILVA

Situação hipotética:

Uma loja de perfumes vende somente três tipos de perfumes. Durante o mês de janeiro, foram vendidas 420 cestas de presentes contendo pelo menos um dos três tipos de perfume a seguir: Floratta, Kayak e Malbec. As vendas ocorreram da seguinte forma: nenhuma cesta continha os três tipos de perfume; 225 cestas continham Floratta; 215 cestas continham Kayak; 45 cestas continham Florata e Malbec; 78 cestas continham Florata e Kayak; 63 com Kayak e Malbec.

Com base nessa situação hipotética, julgue os itens **59 e 60** a seguir.

59. Em menos de 70 cestas havia somente perfume do tipo Kayak.

Gabarito: Errado

Comentário: Com as informações apresentadas, podemos montar o seguinte diagrama lógico:

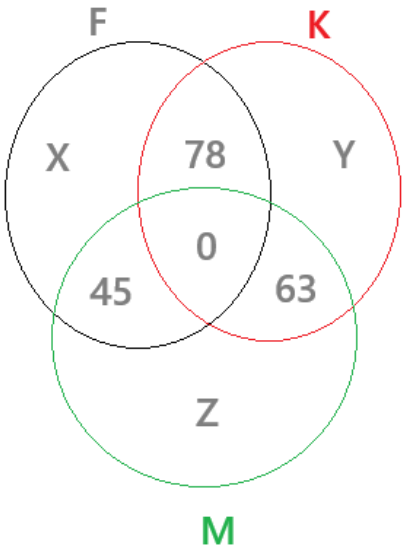

A questão informou que "225 cestas continham Florata; 215 cestas continham Kayak". Dessa forma, conseguimos encontrar os valores de X e Y:

- 225 = X + 78 + 45 + 0
- **X = 102**
- 215 = Y + 78 + 63 + 0
- **Y = 74**

Por fim, como a questão afirmou que no total teríamos 420 cestas, podemos encontrar o valor de Z:

- 420 = 102+78+45+0+74+63+Z
- **Z = 58**

Dessa forma, verificamos que em pelo menos **74 cestas** havia somente perfume do tipo Kayak. Temos o item como **ERRADO**.

60. Em mais de 165 cestas continha o perfume Malbec.

Gabarito: Certo

Comentário: Conforme vimos anteriormente, o seguinte quantitativo de Malbec foi vendido:

- M = 45 + 0 + 63 + 58
- **M = 166 cestas.**

Portanto, o item está **CERTO**.

98276239072 - FABIANO CARBONELL DA SILVA

-- BLOCO II --

INFORMÁTICA

No que se refere a redes de computadores, julgue os itens que se seguem.

61. O modelo de rede par-a-par não possui hierarquia entre as máquinas e estas se comunicam diretamente, sem passar por nenhum servidor dedicado.

Gabarito: Certo

Comentário: a rede par-a-par ou *peer-to-peer* (P2P) trata-se do modelo não hierárquico de rede em que as máquinas se comunicam diretamente, sem passar por nenhum servidor dedicado, podendo compartilhar dados e recursos umas com as outras. Essas redes são facilmente configuráveis, escaláveis e possibilitam altas taxas de velocidade.

62. Uma rede MAN *(Metropolitan Area Network)* pode se estender por dezenas de quilômetros e ser utilizada para interconectar a matriz de uma empresa a suas filiais localizadas na mesma cidade ou região metropolitana.

Gabarito: Certo

Comentário: a rede MAN, caracterizada por sua abrangência metropolitana, possui a capacidade de interligar redes locais (LANs) em uma área geográfica maior que uma LAN, mas menor que uma WAN (*Wide Area Network).* Sua aplicação em interconectar a matriz de uma empresa a suas filiais - na mesma cidade ou região metropolitana - é uma de suas principais finalidades.

63. Considerando a divisão em camadas do Modelo OSI *(Open Systems Interconnection)*, a camada de enlace de dados é a responsável por definir o sentido das transmissões entre dois dispositivos: *simplex, half-duplex* ou *full-duplex*.

Gabarito: Errado

Comentário: na verdade, a camada física é a responsável por definir o sentido das transmissões entre dois dispositivos. Além disso, esta camada define como os dispositivos estarão fisicamente conectados; e as especificações elétricas e mecânicas aplicáveis.

64. Na topologia de rede em anel (*ring),* os dados são transmitidos em *broadcast.* Além disso, por apresentar uma comunicação simplex, essa topologia não apresenta colisões.

Gabarito: Certo

Comentário: na topologia em anel, cada dispositivo tem uma conexão ponto-a-ponto com outros dois dispositivos conectados lado a lado, fazendo uso de uma comunicação com transmissão unidirecional (*simplex*). Além disso, os dados são transmitidos em *broadcast (para todos)* e não existe colisões, tendo em vista que não temos uma transmissão *half-duplex.*

65. O cabo de par trançado CAT4 possui taxa máxima de transmissão de até 16 Mbps, com largura de banda de 20 MHz.

Gabarito: Certo

Comentário: o cabo de par trançado é formado por quatro pares de fios trançados (blindados ou não), envolto de um revestimento externo flexível. Eles são trançados para diminuir a interferência eletromagnética externa e interna. O cabo CAT4, em particular, possui taxa máxima de transmissão de até 16 Mbps, com largura de banda de 20 MHz.

98276239072 - FABIANO CARBONELL DA SILVA

CATEGORIA	TAXA MÁXIMA DE TRANSMISSÃO	LARGURA DE BANDA
CAT3	Até 10 Mbps	16 MHz
CAT4	**Até 16 Mbps**	**20 MHz**
CAT5	Até 100 Mbps	100 MHz
CAT5E	Até 1000 Mbps	100 MHz
CAT6	Até 10000 Mbps	250 MHz
(...)	(...)	(...)

66. Os dispositivos *hub* e *placa de rede* operam na camada de enlace de dados do modelo OSI.

Gabarito: Errado

Comentário: o modelo OSI é dividido em sete camadas, quais sejam: física, enlace de dados, rede, transporte, sessão, apresentação e aplicação. Dito isto, o *hub* (dispositivo burro – não realiza filtragem) opera na camada física, enquanto a placa de rede opera na camada de enlace de dados.

67. O endereço '172.15.0.1' está dentro da faixa de endereços IPv4 destinados para redes privadas.

Gabarito: Errado

Comentário: relembrando as três faixas de endereços IPv4 destinados para redes privadas:

- *Classe A: 10.0.0.0 a 10.255.255.255*
- *Classe B: 172.16.0.0 a 172.31.255.255*
- *Classe C: 192.168.0.0 a 192.168.255.255*

Perceba que o endereço '172.15.0.1' não está inserido em nenhuma das três faixas, apesar de muito próximo do intervalo definido na Classe B. Fique atento.

68. O DHCP *(Dynamic Host Configuration Protocol)* é um protocolo cliente/servidor da camada de rede da arquitetura TCP/IP, que permite a alocação estática ou dinâmica de endereços IP (*Internet Protocol)*.

Gabarito: Errado

Comentário: apesar de permitir a alocação estática ou dinâmica de endereços IP, e ser um protocolo do tipo cliente/servidor, o **DHCP** faz parte da **camada de aplicação** da arquitetura TCP/IP, e não da camada de rede.

Com base nos conceitos de correio eletrônico e *cloud computing*, julgue os itens subsequentes:

69. No Gmail, ao escrever uma nova mensagem de e-mail, o usuário tem a opção de inserir arquivos diretamente do Google Drive, sem a necessidade de realizar o download prévio do arquivo para o dispositivo local.

Gabarito: Certo

Comentário: o Gmail oferece integração direta com o Google Drive, permitindo que os usuários adicionem arquivos armazenados na nuvem diretamente em suas mensagens de e-mail.

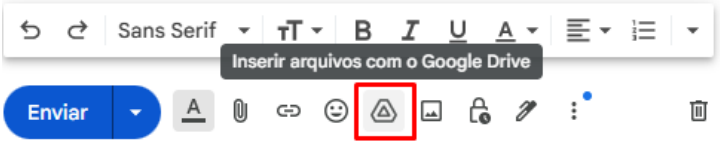

70. O modelo de serviço PaaS (*Platform as a Service)* possibilita que usuários acessem e utilizem softwares e aplicativos na nuvem, sem a necessidade de instalação e manutenção em seus dispositivos locais.

Gabarito: Errado

Comentário: na verdade, o modelo que corresponde às características descritas na assertiva é o SaaS (*Software as a Service*). O PaaS, por sua vez, fornece um ambiente completo de desenvolvimento e implantação na nuvem, mais voltado para desenvolvedores de aplicações, e não para usuários finais.

98276239072 - FABIANO CARBONELL DA SILVA

A respeito de Internet, de *intranet* e de navegadores web, julgue os itens a seguir.

71. A *extranet* permite que parceiros, fornecedores ou clientes acessem determinados recursos da *intranet* de uma organização.

Gabarito: Certo

Comentário: uma *extranet* é uma extensão da *intranet* que permite o acesso remoto de parceiros, fornecedores e clientes a determinados recursos da organização. Por lidar com informações sensíveis, seu acesso deve ser controlado e restrito, utilizando mecanismos de autenticação, criptografia e firewalls para garantir a proteção dos dados e evitar acessos não autorizados.

72. Ao navegar por uma janela de navegação anônima no Google Chrome, o usuário tem a garantia de que o seu histórico de navegação e os seus downloads não serão salvos pelo navegador.

Gabarito: Errado

Comentário: o histórico de navegação, de fato, não será salvo pelo Chrome durante a navegação anônima. No entanto, os downloads ainda serão salvos.

Para o próximo item, considere a seguinte imagem da barra de pesquisa do Google:



73. O ícone localizado à direita do microfone, representado por um quadrado com um ponto no centro, aciona a pesquisa com o Google Lens.

Gabarito: Certo

Comentário: o ícone parecido com uma câmera, localizado à direita do microfone na barra de pesquisa do Google, aciona a pesquisa por imagem com o Google Lens. Observe a janela acionada ao clicar no ícone indicado:

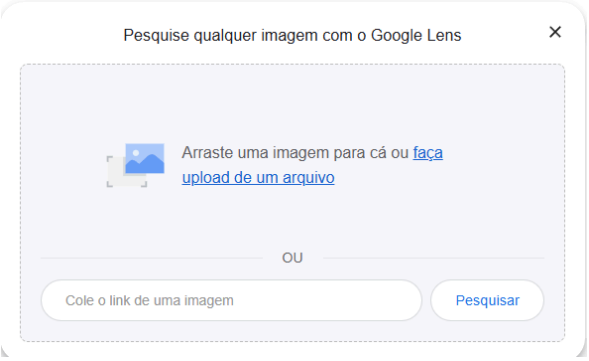

Com relação a sistemas operacionais, julgue os itens que se seguem.

74. No Windows 10, um arquivo excluído a partir da utilização das teclas *Shift + Delete* não é enviado para a Lixeira. Assim, em regra, sua recuperação exige o uso de softwares especializados ou técnicas avançadas de restauração de dados.

Gabarito: Certo

Comentário: no Windows, as teclas de atalho *Shift + Delete* podem ser utilizadas para remover arquivos permanentemente, ou seja, sem passar pela Lixeira. Nesses casos, a recuperação ainda pode ser possível, mas é necessária a utilização de softwares especializados, desde que o espaço anteriormente ocupado pelo arquivo não tenha sido sobrescrito.

75. Na linha de comando do Linux, um usuário comum é identificado com um símbolo de cifrão ($).

Gabarito: Certo

Comentário: o Linux possui três tipos de usuário: usuário comum, usuário administrador (root) e usuário de sistema. O símbolo de cifrão ($) na linha de comando identifica um usuário comum, enquanto o símbolo de cerquilha (#) identifica um usuário *root*. Já um usuário de sistema, que é

98276239072 - FABIANO CARBONELL DA SILVA

criado para executar serviços e processos do sistema operacional, pode ser identificado pelo símbolo de cifrão ($), se estiver operando com privilégios limitados, ou pelo símbolo de cerquilha (#), caso possua permissões de administrador.

Acerca dos programas de edição de textos e planilhas eletrônicas, julgue os itens a seguir.

76. O recurso *Referência Cruzada* do MS-Word 2019 permite a inserção de uma anotação no pé da página fornecendo mais informações sobre algo no documento.

Gabarito: Errado

Comentário: a assertiva descreveu a funcionalidade do recurso *Inserir Nota de Rodapé*. O recurso *Referência Cruzada,* por sua vez, é utilizado para fazer referência a lugares específicos no documento, como títulos ou ilustrações.

77. No LibreOffice Writer, três cliques consecutivos com o botão esquerdo do *mouse* seleciona uma frase, enquanto quatro cliques consecutivos seleciona todo o parágrafo.

Gabarito: Certo

Comentário: ao contrário do MS-Word, que possui apenas três funções com os cliques consecutivos do *mouse* sobre um trecho do documento, no Writer:

1 clique: posiciona o cursor;

2 cliques: seleciona a respectiva palavra;

3 cliques: seleciona a respectiva frase;

4 cliques: seleciona todo o parágrafo.

Para os próximos dois itens, considere a planilha a seguir, gerada no MS-Excel 2019.

	A	B	C	D
1	NOTAS_ANP	PROVA PRÁTICA	PROVA TEÓRICA	MÉDIA FINAL
2	ALUNO_01	10	7	9
3	ALUNO_02	7	10	8
4	ALUNO_03	9	6	8

78. Pode-se afirmar que B3 e C3 são precedentes de D3.

Gabarito: Certo

Comentário: as setas em azul indicam que a fórmula de D3 depende dos valores que constam em B3 e C3. Assim, de fato, B3 e C3 são precedentes de D3.

79. É correto afirmar que o cálculo da "MÉDIA FINAL" (coluna D) atribui um peso maior à "PROVA PRÁTICA" (coluna B) em relação à "PROVA TEÓRICA" (coluna C).

Gabarito: Certo

Comentário: os valores das médias finais indicam que a "PROVA PRÁTICA" tem maior influência no resultado final, pois, ao comparar diferentes combinações de notas, percebe-se que variações na nota da prova prática impactam mais a média do que variações na prova teórica.

Com relação a conceitos de programação Python e R, julgue os itens que se seguem.

80. Python é uma linguagem de alto nível, interpretada e multiparadigma.

Gabarito: Certo

Comentário: Python é uma linguagem de **alto nível**, tendo em vista o seu elevado nível de abstração, bem distante do código de máquina; **interpretada**, pois seu código-fonte é executado linha a linha por um interpretador; e **multiparadigma**, já que suporta mais de um paradigma de programação: imperativo, procedural, funcional, etc.

81. Avalie o seguinte código Python:

```
y = 2
w = 5
c = y ** w
print("O valor de c é", c)
```


98276239072 - FABIANO CARBONELL DA SILVA

O código apresentará em tela, após execução, o seguinte resultado:

O valor de c é 20

Gabarito: Errado

Comentário: no código apresentado, são definidas três variáveis: **y = 2; w = 5;** e **c = 2 ** 5**.

A chave para resolver a questão é saber o significado do operador ** na linguagem Python, que indica potenciação. Assim, a **variável c** receberá o valor de 2 elevado a 5, ou seja, o **valor 32**. Portanto, o código destacado apresentará em tela o seguinte resultado:

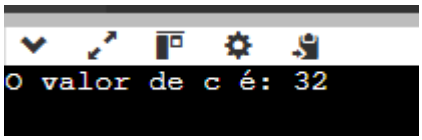

82. O código R a seguir apresentará em tela, após execução, o valor 6.

a <- c(6, 9, 15)

b <- c(2, 4, 6)

k <- a - b

print(mean(k))

Gabarito: Certo

Comentário: no código R destacado, foram definidos os vetores 'a' e 'b', que receberam uma concatenação de valores do tipo '*numeric*'. Após isso, foi atribuída a subtração dos vetores para a variável 'k'. Desse modo, 'k' receberá a subtração, posição a posição, dos valores de 'a' e 'b':

k <- (6 - 2, 9 - 4, 15 - 6)

k <- (4, 5, 9)

Portanto, 'k' será um vetor com os números 4, 5 e 9.

Por fim, a função *print(mean(k))* foi utilizada para imprimir a média da variável 'k' no console. O resultado da média dos valores 4, 5 e 9 é: (4 + 5 + 9) / 3 = **6**.

Sendo assim, será apresentado no console, após a execução do código, **o valor 6**.

Com referência a conceitos de proteção e de segurança da informação, julgue os itens a seguir.

83. Os malwares do tipo ransomware, ao infectarem um sistema, apenas coletam informações sensíveis do usuário, sem impedir o acesso aos arquivos armazenados.

Gabarito: Errado

Comentário: o ransomware criptografa ou bloqueia o acesso aos arquivos e/ou ao equipamento do usuário, exigindo um pagamento (resgate) para a liberação. Em geral, o pagamento é exigido em criptomoedas e não garante o restabelecimento do acesso aos dados.

84. Adwares são malwares projetados explicitamente para capturar teclas digitadas em teclados virtuais.

Gabarito: Errado

Comentário: na verdade, o malware que tem a finalidade de capturar as teclas digitadas em teclados virtuais é o *screenlogger*. Os adwares, por sua vez, são malwares projetados explicitamente para apresentar propagandas e anúncios em navegadores web, geralmente sem a autorização do usuário.

85. O princípio da confidencialidade busca garantir que apenas pessoas autorizadas tenham acesso aos dados, protegendo-os contra acessos indevidos.

Gabarito: Certo

Comentário: o princípio fundamental da confidencialidade trata da capacidade de um sistema não permitir que informações estejam disponíveis ou sejam reveladas a pessoas não autorizadas. É um princípio diretamente relacionado à privacidade, em que apenas pessoas autorizadas podem acessar e visualizar dados privados.

Com base nos conceitos de *data mining*, analise os seguintes itens.

98276239072 - FABIANO CARBONELL DA SILVA

86. Em *data mining,* as técnicas de classificação e regressão são consideradas de aprendizado supervisionado, enquanto as técnicas de associação e agrupamento são de aprendizado não-supervisionado.

Gabarito: Certo

Comentário: uma técnica de aprendizado supervisionado é aquela que necessita de supervisão ou interação com um ser humano, enquanto uma técnica de aprendizado não-supervisionado não necessita desse tipo de interação. Dito isto, temos que as técnicas de **classificação e regressão** são de **aprendizado supervisionado**, enquanto que as técnicas de <u>associação e agrupamento</u> são de <u>aprendizado não-supervisionado</u>.

87. No processo de descoberta de conhecimento em bancos de dados *(Knowledge Discovery in Databases - KDD),* a etapa de mineração de dados ocorre antes das fases de pré-processamento e transformação, sendo responsável pela seleção e limpeza dos dados.

Gabarito: Errado

Comentário: em primeiro lugar, cabe relembrar as cinco fases do KDD: seleção, pré-processamento, transformação, **mineração de dados** e interpretação. Assim, perceba que a mineração de dados ocorre após as etapas de seleção, pré-processamento e transformação, sendo a responsável por identificar padrões e extrair conhecimento dos dados processados, e não pela seleção ou limpeza destes.

Considerando a teoria geral de sistemas e a teoria da informação, julgue os itens a seguir:

88. A heterostase pode ser definida como a capacidade de um sistema sair de uma homeostase para outra, que pode ser bem diferente da anterior.

Gabarito: Certo

Comentário: de fato, a heterostase refere-se à capacidade de um sistema de transitar de um estado de equilíbrio (homeostase) para outro, que pode ser substancialmente diferente.

89. Na teoria geral de sistemas, existem basicamente quatro formas para a transmissão do conhecimento: socialização, externalização, combinação e internalização. Na socialização, um conhecimento pessoal é repassado por meio da troca de experiências, observação e prática em conjunto.

Gabarito: Certo

Comentário: a expiral do conhecimento é composta pelas quatro formas de transmissão do conhecimento destacadas na assertiva, quais sejam: socialização, externalização, combinação e internalização. Dentre estas, aquela em que o conhecimento pessoal é repassado pela troca de experiências ou prática em conjunto é realmente a socialização (tácito -> tácito).

90. O modelo em espiral de Boehm é caracterizado por uma abordagem linear e sequencial, semelhante ao modelo em cascata, sem a incorporação de ciclos iterativos ou análise de riscos.

Gabarito: Errado

Comentário: na verdade, o modelo em espiral proposto por Boehm é iterativo e orientado a riscos, combinando o desenvolvimento do software com atividades gerenciais e permitindo revisões contínuas a cada ciclo.

Julgue os itens a seguir referentes a bancos de dados.

91. No modelo entidade-relacionamento a seguir, um autor escreve no mínimo um e no máximo N livros; já um livro é escrito por no mínimo um e no máximo M autores.

98276239072 - FABIANO CARBONELL DA SILVA

Gabarito: Errado

Comentário: Na verdade, pelo modelo descrito, um autor escreve no mínimo um livro e no máximo M livros; e um livro é escrito por no mínimo um e no máximo N autores. Destaca-se que a leitura da cardinalidade é realizada de dentro para fora. Assim, perceba que a assertiva inverteu a leitura, trocando o N pelo M. Fique atento.

92. Os efeitos da gravação de uma transação bem-sucedida no banco de dados devem ser confirmados por meio de um processo conhecido como ROOLBACK.

Gabarito: Errado

Comentário: na verdade, o processo de ROOLBACK é executado quando a gravação de uma transação deve ser desfeita, pela ocorrência de alguma falha. A assertiva se referiu ao processo denominado de **COMMIT,** que representa a confirmação da **gravação de uma transação bem-sucedida** no banco de dados. Esses dois processos decorrem diretamente da propriedade da atomicidade.

93. Com base na divisão de níveis da arquitetura ANSI/SPARC, o nível externo descreve todo o banco de dados e se concentra em definir quais dados estão armazenados e quais as relações entre esses dados.

Gabarito: Errado

Comentário: a arquitetura ANSI/SPARC é dividida nos níveis **externo, conceitual e interno**. O nível externo inclui uma série de visões do usuário, em que cada uma destas descreve a parte do banco de dados em que um grupo de usuários está interessado, ocultando o restante do banco. O nível conceitual, por sua vez, descreve a estrutura do banco de dados inteiro para uma comunidade de usuários, destacando quais dados são armazenados em todo o banco de dados e como os dados estão inter-relacionados. Já o nível interno trata de como os dados estão fisicamente armazenados no banco de dados e no hardware da máquina. Portanto, perceba que a assertiva apresenta características do nível conceitual, e não do nível externo.

94. Uma chave estrangeira (*foreign key)* é um campo de uma tabela que referencia uma chave primária, que pode ser de outra ou até mesmo da própria tabela.

Gabarito: Certo

Comentário: a chave estrangeira (*foreign key*) é um campo em uma tabela que estabelece uma relação com a chave primária de outra tabela ou, em casos de autorrelacionamento, com a chave primária da própria tabela. Em entendimento da banca Cebraspe, a **chave estrangeira sempre referencia uma chave primária**.

Com base na linguagem SQL (Structured Query Language), analise os itens a seguir.

95. Restrições (*constraints*) são um conjunto de limitações utilizadas para especificar regras para os dados em uma tabela de um banco de dados relacional. A restrição NOT NULL garante que todos os valores de uma coluna sejam diferentes entre si.

Gabarito: Errado

Comentário: as restrições evitam que determinadas ações violem a integridade da estrutura dos dados especificada no esquema do banco de dados relacional. Dito isto, a restrição NOT NULL garante que uma coluna não possa ter um valor nulo. Já a restrição UNIQUE é a responsável por garantir que todos os valores de uma coluna sejam diferentes entre si.

96. O seguinte comando seleciona apenas a coluna ALUNO_ANP da tabela ACADEMIA_PF.

SELECT * FROM ALUNO_ANP, ACADEMIA_PF;

Gabarito: Errado

98276239072 - FABIANO CARBONELL DA SILVA

Comentário: o comando SELECT é utilizado para recuperar informações de um banco de dados, com a seguinte sintaxe:

SELECT LISTA_DE_COLUNAS **FROM** LISTA_DE_TABELAS

Perceba que foi utilizado um asterisco (*) no campo de LISTA_DE_COLUNAS, indicando que o usuário deseja recuperar todas as colunas da tabela. Ademais, foram especificadas duas tabelas após o comando FROM, quais sejam: ALUNO_ANP e ACADEMIA_PF.

Dessa forma, o comando destacado na assertiva seleciona todas as colunas das tabelas ALUNO_ANP e ACADEMIA_PF, e faz um produto cartesiano entre estas, retornando todas as colunas de ambas as tabelas, combinando cada linha da primeira com cada linha da segunda.

Para selecionar apenas a coluna ALUNO_ANP da tabela ACADEMIA_PF, o comando SQL correto seria:

SELECT ALUNO_ANP FROM ACADEMIA_PF;

98276239072 - FABIANO CARBONELL DA SILVA

-- BLOCO III --

CONTABILIDADE GERAL

Com relação aos objetivos e princípios da contabilidade, aos elementos que compõem o patrimônio das entidades e aos eventos que podem vir a impactar esse patrimônio, julgue os itens a seguir.

97. Qualquer fato administrativo que altere o patrimônio líquido e que envolva contas patrimoniais ativas ou passivas será sempre um fato contábil misto.

Gabarito: Errado

Comentário:

Na verdade, quando um fato administrativo altera o patrimônio líquido, ele pode ser um fato contábil **misto ou modificativo.**

Assim, será um fato **modificativo** quando envolver 1 conta patrimonial e 1 conta de resultado ou do patrimônio líquido.

Já o **fato misto** ocorre quando há a simultaneidade de um fato permutativo entre contas patrimoniais e um fato modificativo.

Portanto, um fato que altera o patrimônio líquido e que envolve contas patrimoniais do ativo ou do passivo poderá ser modificativo ou misto.

98. A situação patrimonial é superavitária quando o passivo é igual ao ativo subtraído do patrimônio líquido, sendo todos maiores que zero.

Gabarito: Certo

Comentário:

Exatamente! A situação patrimonial superavitária ocorre quando o **patrimônio líquido é maior do que zero**. Assim, o valor do passivo será igual ao ativo subtraído do patrimônio líquido. Vejamos:

Ativo = R$ 6.000,00

Passivo = R$ 3000,00

Patrimônio Líquido = R$ 3000,00

Logo, Passivo = Ativo – Patrimônio Líquido.

Ademais, cabe destacar:

- Situação patrimonial **nula**: **PL = 0**
- Situação patrimonial **negativa: PL < 0**
- Situação patrimonial **positiva (superavitária): PL > 0**

99. Na constituição e no encerramento de determinada entidade, é possível que os valores do ativo e do passivo sejam iguais a zero.

Gabarito: Errado

Comentário:

De acordo com a Lei nº 6.404/76:

Art. 80. A constituição da companhia depende do cumprimento dos seguintes requisitos preliminares:
I - subscrição, pelo menos por 2 (duas) pessoas, de todas as ações em que se divide o capital social fixado no estatuto;
*II - **realização, como entrada, de 10% (dez por cento), no mínimo, do preço de emissão das ações subscritas em dinheiro**;*
III - depósito, no Banco do Brasil S/A., ou em outro estabelecimento bancário autorizado pela Comissão de Valores Mobiliários, da parte do capital realizado em dinheiro.

Assim, na **constituição da companhia**, o valor do **ativo** deverá ser maior do que 0, pois é obrigatória a realização de pelo menos 10% do preço das ações subscritas em **dinheiro**. Portanto, o ativo será maior do que 0.

Ademais, no encerramento da entidade, os valores do ativo e do passivo podem ser iguais a zero. Isso pode acontecer na situação em que o valor do ativo seja igual ao do passivo para liquidar todas as obrigações (passivo exigível) para o encerramento da entidade.

98276239072 - FABIANO CARBONELL DA SILVA

100. A empresa que efetua o pagamento dos salários dos seus empregados no quinto dia útil do mês seguinte à prestação dos serviços e que reconhece contabilmente a respectiva despesa no mês em que os serviços foram prestados age em consonância com o princípio contábil de competência.

Gabarito: Certo

Comentário:

Exatamente! O reconhecimento da **despesa** com o salário dos empregados é realizado no mês em que os serviços foram prestados, conforme o **regime de competência.**

Assim, muitas vezes ocorre o reconhecimento da **despesa com salários** sem o devido pagamento, pois o pagamento é feito, geralmente, no 5º dia útil após o mês da prestação dos serviços. Desse modo, o lançamento seria:

- D – Salários (despesa)
- C – Salários a pagar (passivo)

Ademais, quando o pagamento do salário ocorre no mesmo mês da prestação do serviço, o lançamento é:

- D – Salários (despesa)
- C – Caixa ou Bancos (ativo)

101. O objeto da contabilidade é o patrimônio de qualquer entidade.

Gabarito: Certo

Comentário:

Exatamente! O objeto da contabilidade é o patrimônio das entidades. O termo "entidades", nesse caso, se refere a empresas, pessoas físicas, órgãos públicos etc.

Logo, o objeto é o patrimônio de qualquer entidade, que é formado pelo conjunto de bens, direitos e obrigações.

102. A contabilidade possui a finalidade principal de fornecer a seus usuários informações sobre a situação patrimonial e financeira da entidade com o objetivo de auxiliar na tomada de decisões.

Gabarito: Errado

Comentário:

De acordo com a banca CEBRASPE, a **finalidade** da contabilidade é controlar o patrimônio das entidades.

O **objetivo** da contabilidade é fornecer informações sobre a situação patrimonial e financeira da entidade para a tomada de decisões dos usuários externos e internos.

Com relação à escrituração contábil nos livros das sociedades, julgue os itens subsequentes.

103. A compra à vista de um veículo por R$ 70.000, mesmo esse valor resulte de um desconto, negociado no momento da compra, no valor de R$ 6.000, é representado por meio de um lançamento de segunda fórmula.

Gabarito: Errado

Comentário:

A operação realizada no comando da questão envolve o **desconto incondicional**, que é um desconto obtido no **momento da compra**, sem qualquer condição para o pagamento. Assim, para o comprador, não gera receita nem qualquer lançamento.

Logo, a compra à vista do veículo é realizada por meio de um lançamento de **primeira fórmula**. Vejamos:

- D – Veículos (ativo): R$ 70.000
- C – Caixa (ativo): R$ 70.000

104. O livro caixa é escriturado mediante o método das partidas dobradas.

Gabarito: Errado

Comentário: Na verdade, o livro caixa é escriturado mediante o **método das partidas simples**, visto que são registradas apenas as entradas e saídas de

98276239072 - FABIANO CARBONELL DA SILVA

recursos financeiros de contas caixa ou bancos, não sendo registrados os lançamentos de acordo com o método das partidas dobradas.

105. O ICMS incidente sobre a aquisição de mercadoria para revenda é reconhecido, no ato da compra, como um ativo representativo de estoque.

Gabarito: Errado

Comentário:

Na compra de mercadorias, ocorre a incidência do ICMS a recuperar, que é um **direito** da empresa para utilizá-lo na apuração do ICMS sobre vendas.

Desse modo, o ICMS incidente sobre a compra de mercadorias para revenda gera um **direito**, e não um ativo representativo de **estoque**.

Assim, o lançamento do ICMS no ato da compra é:

- D – Mercadorias (ativo)
- D – ICMS a recuperar (ativo) (direito da empresa)
- C – Fornecedores (passivo)
-

Determinada sociedade comercial realizou, no período corrente, as transações apresentadas a seguir.

- Apropriou a terceira cota anual cheia de depreciação de um veículo, originalmente adquirido por R$90.000, com vida útil estimada em 5 anos. A empresa considera um valor residual de 10% para todos os seus bens.
- Descontou, no banco onde mantém conta, uma duplicata a vencer em 60 dias. O título, com valor nominal de R$ 80.000, gerou um crédito de R$ 78.000 na conta-corrente da empresa.
- Vendeu mercadorias por R$ 20.000, líquido de tributos, realizando a baixa dos estoques correspondentes, no valor de R$ 8.500.

Nessa situação hipotética, julgue os itens seguintes**.**

106. A venda de mercadorias gerou um resultado com mercadorias de R$ 11.500.

Gabarito: Certo

Comentário:

Exatamente! O resultado com mercadorias ou resultado operacional bruto ou lucro bruto é obtido por meio da receita líquida de vendas deduzida do CMV (custo da mercadoria vendida). Vejamos:

- Vendas de mercadorias líquidas: R$ 20.000
- (-) Custo da Mercadoria Vendida: R$ 8.500
- = Resultado com Mercadorias: **R$ 11.500**.

107. No momento da operação de desconto do título, a empresa contabilizou despesa com encargos financeiros no valor de R$ 2.000.

Gabarito: Errado

Comentário:

No momento da operação, não há o reconhecimento da despesa com encargos financeiros, pois os encargos serão reconhecidos mensalmente, e não no momento da operação de desconto do título.

Assim, o que ocorre é um lançamento de uma conta redutora do passivo, chamada **encargos financeiros a transcorrer**. Vejamos:

- D – Bancos (ativo): R$ 78.000
- D – Encargos financeiros a transcorrer (redutora do passivo): R$ 2.000
- C – Desconto de título (passivo): R$ 80.000

108. A depreciação do veículo gerou lançamento a crédito de R$ 16.200 na conta de depreciação acumulada.

Gabarito: Certo

Comentário:

A apropriação incidiu sobre a terceira cota, ou seja, o valor que o veículo foi depreciado no terceiro ano. Porém, como não é informado o método de depreciação, então é utilizado o método linear. Assim, para calcular a depreciação, é necessário encontrar o seu valor depreciável.

98276239072 - FABIANO CARBONELL DA SILVA

Valor depreciável = Custo – Valor Residual.

Valor depreciável = R$ 90.000 – R$ 9.000 = R$ 81.000

Vida útil = 5 anos.

Valor depreciação anual: R$ 81.000/5 = **R$ 16.200**

Assim, a empresa reconhecerá, anualmente, o valor total de depreciação de **R$ 16.200.**

Logo, o lançamento correto é:

- D – Depreciação anual (despesa): **R$ 16.200**
- C – **depreciação acumulada** (redutora do ativo): **R$ 16.200**

No que se refere ao balancete de verificação contábil, julgue os itens subsequentes.

109. O balancete de verificação é um demonstrativo auxiliar utilizado unicamente para fins operacionais, sendo composto por todas as contas com os seus respectivos saldos, que são extraídos do livro razão.

Gabarito: Certo

Comentário:

Exatamente! O balancete de verificação é um demonstrativo de caráter auxiliar em que são relacionadas todas as contas, sejam elas patrimoniais ou de resultado. O balancete é, de fato, utilizado unicamente para fins operacionais, pois possui o objetivo de verificar a aplicação do método das partidas dobradas. Além disso, as informações necessárias para a sua elaboração são extraídas do **livro razão**, que apresenta todas as contas e os saldos.

110. O saldo da movimentação do período de uma conta é explicitado por meio de balancetes de seis ou oito colunas.

Gabarito: Errado

Comentário:

Na verdade, apenas o balancete de **oito** colunas que é apresentado o saldo da **movimentação do período**. Vejamos:

- **Balancete de Verificação – 2 colunas**: apenas o Saldo Final das contas.
- **Balancete de Verificação – 4 colunas**: Saldo Anterior + Movimento + Saldo Final
- **Balancete de Verificação – 6 colunas**: Balancete Anterior + Movimento do Período + Balancete atual
- **Balancete de Verificação – 8 colunas:** Balancete Anterior + **Movimento do Período + Saldo do Período** + Balancete atual

A seguir, apresenta-se o balancete de verificação de uma sociedade anônima aberta do setor de varejo. Atualmente, essas são todas as contas patrimoniais da empresa, que estão apresentadas em ordem alfabética, com os respectivos saldos em módulos e em reais.

Contas	Saldos
Ações em tesouraria	500
Caixa	600
Capital Social	3.600
Clientes	1.000
Contas a pagar em 3 anos	1.700
Contas a receber em 1.000 dias	3.100
Depreciação acumulada	300
Estoques	900
Fornecedores	700
Impostos a recolher	200
Máquinas	900
Provisões	300
Reserva legal	1000
Terrenos	800

98276239072 - FABIANO CARBONELL DA SILVA

Com base nessas informações e no balancete hipotético precedente, julgue os itens seguintes.

111. O total do ativo da empresa é de R$ 7.300.

Gabarito: Errado

Comentário:

Vejamos o total das contas de ativo da empresa:

- **Caixa**: R$ 600
- **Clientes:** R$ 1.000
- **Contas a receber em 1.000 dias**: R$ 3.100
- **(-)Depreciação acumulada** (ret. do ativo): R$ 300
- **Estoques**: R$ 900
- **Máquinas**: R$ 900
- **Terrenos:** R$ 800

Assim, o valor total do ativo é: 600 + 1000 + 3100 - 300 + 900 + 900 + 800 = **R$ 7.000**

112. No balanço patrimonial da empresa, as contas ações em tesouraria e reserva legal são classificadas, respectivamente, no ativo circulante e no patrimônio líquido.

Gabarito: Errado

Comentário:

De acordo com a lei das SA:

- *Art. 178. No balanço, as contas serão classificadas segundo os elementos do patrimônio que registrem, e agrupadas de modo a facilitar o conhecimento e a análise da situação financeira da companhia.*
- *III – patrimônio líquido, dividido em **capital social, reservas de capital, ajustes de avaliação patrimonial, reservas de lucros, ações em tesouraria e prejuízos acumulados**. (Incluído pela Lei nº 11.941, de 2009)*

A conta **ações em tesouraria** é uma conta retificadora do **patrimônio líquido**. Portanto, não é classificada no ativo circulante.

A conta **reserva legal** é classificada no **patrimônio líquido**, pois é uma das reservas de lucro. Vejamos o art. 193 da Lei 6.404/76 sobre a reserva legal:

- *Art. 193. Do lucro líquido do exercício, 5% (cinco por cento) serão aplicados, antes de qualquer outra destinação, **na constituição da reserva legal**, que não excederá de 20% (vinte por cento) do capital social.*
- *§ 1º A companhia poderá deixar de constituir a reserva legal no exercício em que o saldo dessa reserva, acrescido do montante das reservas de capital de que trata o*
- *§ 1º do artigo 182, exceder de 30% (trinta por cento) do capital social. § 2º A reserva legal tem por fim assegurar a integridade do capital social e somente poderá ser utilizada para compensar prejuízos ou aumentar o capital.*

113. As disponibilidades da empresa totalizam R$ 600.

Gabarito: Certo

Comentário:

As disponibilidades de uma empresa são elementos que representam dinheiro ou que nele possam ser convertidos de forma imediata.

Assim, são exemplos contas que compõem as disponibilidades:

- **Caixa**
- **Bancos**
- **Numerários em trânsito**
- **Aplicações financeiras de curto prazo**, de alta liquidez, que são prontamente conversíveis em montante conhecido de caixa e que estão sujeitas a um insignificante risco de mudança de valor.

Desse modo, no balancete apresentado pela empresa, a única conta que compõe a **disponibilidade** é a conta **caixa.**

Portanto, o total de disponibilidade da empresa é **R$ 600.**

98276239072 - FABIANO CARBONELL DA SILVA

114. A conta provisões indica que a empresa mensurou com confiabilidade uma provável saída de recursos de prazo ou valor incerto.

Gabarito: Certo

Comentário:

Exatamente! **Provisão é um passivo de prazo ou valor incerto**. Para uma provisão ser reconhecida, deve ser realizada uma mensuração confiável sobre uma **provável** saída de recursos da empresa para liquidar uma obrigação.

Vejamos o CPC 25:

- *14. Uma **provisão** deve ser reconhecida quando:*
- *(a) a entidade tem uma **obrigação presente (legal ou não formalizada) como resultado de evento passado**;*
- *(b) **seja provável que será necessária uma saída de recursos que incorporam benefícios econômicos para liquidar a obrigação**; e*
- *(c) possa ser feita uma **estimativa confiável do valor da obrigação**.*
- ***Se essas condições não forem satisfeitas, nenhuma provisão deve ser reconhecida**.*

Portanto, como a conta **provisões** está reconhecida no balancete da empresa, então é possível afirmar que a empresa mensurou com confiabilidade uma provável saída de recursos de prazo ou valor incerto.

115. No balanço patrimonial apresentado, há mais contas de natureza devedora do que de natureza credora.

Gabarito: Errado

Comentário:

Vejamos o total de contas **devedoras**:

- Ações em tesouraria (retificadora do PL)
- Caixa (ativo)
- Clientes (ativo)
- Contas a receber em 1.000 dias (ativo)
- Estoques (ativo)
- Máquinas (ativo)
- Terrenos (ativo)

Vejamos o total de contas **credoras:**

- Capital Social (PL)
- Contas a pagar em 3 anos (passivo)
- Depreciação acumulada (retificadora do ativo)
- Fornecedores (passivo)
- Impostos a recolher (passivo)
- Provisões (passivo)
- Reserva legal (PL)

Portanto, no balancete há 7 contas **devedoras** e 7 contas **credoras.**

Com relação à demonstração do resultado do exercício (DRE), julgue os itens subsecutivos.

116. Na DRE, o desconto comercial é uma dedução da receita bruta e o desconto condicional é uma despesa operacional financeira.

Gabarito: Certo

Comentário:

Exatamente! O desconto comercial ou incondicional é uma **dedução da receita bruta de vendas**. Já o desconto condicional ou financeiro é uma **despesa financeira operacional da empresa**, que é uma dedução do lucro bruto da empresa. Vejamos:

Parte da estrutura da DRE:

- Faturamento bruto
  - (-) IPI sobre faturamento bruto
- = Receita bruta
  - (-) devoluções e vendas canceladas
  - (-) abatimentos
  - (-) **descontos comerciais (incondicionais)**
  - (-) impostos
- = Receita Líquida
  - (-) Custo da mercadoria vendida (CMV)
- = Lucro Bruto (Resultado Bruto)

98276239072 - FABIANO CARBONELL DA SILVA

- o (-) despesas operacionais
  - Despesas com vendas
  - Despesas gerais e administrativas
  - **Despesas financeiras (condicional)**
- o (+) Receitas operacionais
- = Lucro Líquido (Resultado líquido)

117. Embora a apresentação por natureza seja a mais utilizada pelas organizações na elaboração da DRE, as normas contábeis incentivam a apresentação por função da despesa.

Gabarito: Errado

Comentário:

Na verdade, as organizações utilizam mais a representação por **função** da despesa, pois esse é o método incentivado pela Lei 6.404/76. Porém, o CPC 26 recomenda a apresentação por **natureza** da despesa, exigindo que as entidades que classificarem as despesas por função divulguem informações adicionais sobre a natureza das despesas.

Portanto, a apresentação por **função** é a mais utilizada pelas organizações, apesar de a apresentação por **natureza** ser incentivada pelas normas contábeis.

A apresentação por **função** é mais genérica. Vejamos:

- Apresentação por função:
- o Custo dos produtos e serviços vendidos;
- o Despesas de vendas;
- o Despesas Administrativas;
- o Despesas financeiras;
- o Lucro Bruto.
- Apresentação por natureza:
- o Depreciação;
- o Amortização;
- o Compras de matéria prima;
- o Publicidade;
- o Benefícios a empregados.

Com relação aos pronunciamentos técnicos do Comitê de Pronunciamentos Contábeis (CPC), julgue os próximos itens.

118. As reivindicações contra os recursos econômicos da entidade que reporta são compostas exclusivamente pelo passivo.

Gabarito: Errado

Comentário:

Na verdade, as reivindicações contra os recursos econômicos da entidade que reporta são compostas pelo **passivo e pelo patrimônio líquido.**

De acordo com o CPC 00 (R2), o **passivo** é a obrigação presente da entidade de transferir um recurso econômico como resultado de eventos passados. O **patrimônio líquido** é a participação residual nos ativos da entidade após a dedução de todos os seus passivos. **Ambos os termos representam as reivindicações contra os recursos econômicos.**

Cabe destacar que **os recursos econômicos** são formados pelo **ativo.**

119. A relevância, a representação fidedigna, a compreensibilidade, a tempestividade, a comparabilidade e a capacidade de verificação são características qualitativas da informação dos relatórios contábeis de propósito geral das entidades do setor público.

Gabarito: Certo

Comentário:

Segundo a estrutura conceitual, os relatórios contábeis de propósito geral (RCPGs) apresentam informações financeiras e não financeiras sobre fenômenos econômicos, além de outros fenômenos. Nesse sentido, as características qualitativas da informação incluída nos RCPGs são atributos que tornam a informação útil para os

98276239072 - FABIANO CARBONELL DA SILVA

usuários e dão suporte ao cumprimento dos objetivos da informação contábil.

As **características qualitativas** são:

- **Relevância;**
- **Representação fidedigna;**
- **Compreensibilidade;**
- **Tempestividade;**
- **Comparabilidade;**
- **Capacidade de verificação.**

120. O custo de reposição ou substituição é uma base de mensuração de passivos específica para a entidade e tem como referência valores de saída.

Gabarito: Errado

Comentário:

Na verdade, o custo de reposição ou substituição é uma base de mensuração de **ativos** específica para a entidade e tem como referência valores de **entrada.** Vejamos:

De acordo com a Estrutura Conceitual, o custo de reposição ou substituição corresponde ao custo para substituir o potencial de serviços do ativo na data do relatório. Além disso, é um valor de entrada, observável no mercado, e específico para a entidade.

Ademais, cabe destacar as bases de mensuração dos ativos e dos passivos de acordo com a estrutura conceitual.

Base de mensuração do ativo:

- Custo histórico
- Valor de mercado
- Custo de reposição ou substituição
- Preço líquido de venda
- Valor em uso

Base de mensuração do passivo:

- Custo histórico
- Custo de cumprimento de obrigação
- Valor de mercado
- Custo de liberação
- Preço presumido

98276239072 - FABIANO CARBONELL DA SILVA

-- DISCURSIVA --

A Polícia Federal (PF) desempenha um papel estratégico na repressão ao tráfico de armas no Brasil, atuando na fiscalização de fronteiras, investigação de redes criminosas e desmantelamento de esquemas de comércio ilegal de armamentos. Esse crime tem impacto direto na segurança pública, fortalecendo facções criminosas e contribuindo para o aumento da violência. No entanto, o enfrentamento a essa prática envolve desafios como a necessidade de inteligência policial, integração com órgãos internacionais e respeito às garantias constitucionais.

A ATUAÇÃO DA POLÍCIA FEDERAL NO COMBATE AO TRÁFICO DE ARMAS E A GARANTIA DA SEGURANÇA NACIONAL

- Os principais desafios da Polícia Federal no controle e fiscalização do tráfico de armas em território nacional. **[valor: 3,50 pontos]**
- O impacto das rotas internacionais do tráfico de armas e a atuação da PF em cooperação com outros países. **[valor: 4,50 pontos]**
- O papel da tecnologia e da inteligência policial no aprimoramento das estratégias de combate ao tráfico de armamentos. **[valor: 4,50 pontos]**

98276239072 - FABIANO CARBONELL DA SILVA

Proposta de Solução

A Polícia Federal (PF) desempenha um papel essencial na repressão ao tráfico de armas no Brasil, crime que impacta a segurança pública e fortalece organizações criminosas. A circulação ilegal de armamentos contribui para o aumento da violência urbana e representa uma ameaça à soberania nacional. Diante desse cenário, a PF atua na investigação e desarticulação de redes criminosas, frequentemente em colaboração com outras forças de segurança e organismos internacionais.

Inicialmente, destaque-se que o combate ao tráfico de armas no Brasil encontra obstáculos estruturais e operacionais que dificultam sua repressão. A geografia extensa e porosa das fronteiras brasileiras, somada à limitada presença do Estado em áreas de difícil acesso, facilita a entrada de armamentos ilícitos, especialmente pelas divisas com Paraguai e Bolívia, onde ocorre grande parte do contrabando de armas. Além disso, a facilidade de desvio de armamentos adquiridos legalmente por meio do mercado regulado, como aqueles registrados por Colecionadores, Atiradores e Caçadores (CACs), amplia o arsenal disponível para grupos criminosos. De acordo com o Tribunal de Contas da União, entre 2019 e 2022, foram emitidas licenças de CAC para 5.235 criminosos condenados e 2.690 foragidos da Justiça, evidenciando a necessidade de um controle mais rigoroso sobre essas concessões.

Ademais, observe-se que as rotas internacionais do tráfico de armas têm um impacto significativo na segurança pública brasileira, abastecendo organizações criminosas com armamentos de alto calibre. A PF, ciente da natureza transnacional desse crime, participa de operações conjuntas com agências internacionais para desmantelar essas redes. A Operação Trojan Shield, por exemplo, foi uma colaboração global que resultou na prisão de mais de 800 suspeitos em 16 países, incluindo membros de organizações criminosas no Brasil. Essa cooperação internacional é crucial para enfrentar a complexidade e a abrangência das redes de tráfico de armas.

Por fim, a tecnologia e a inteligência policial desempenham papel central no aprimoramento das estratégias de combate ao tráfico de armas. O uso de bancos de dados integrados, como o Sistema Nacional de Armas (Sinarm) e o Sistema de Gerenciamento Militar de Armas (Sigma), possibilita a rastreabilidade de armamentos e a identificação de desvios no mercado legal. Além disso, ferramentas de monitoramento remoto, como o Sistema Integrado de Monitoramento de Fronteiras (Sisfron), permitem que as forças de segurança realizem o controle de áreas estratégicas de difícil patrulhamento. A incorporação de métodos avançados de análise de inteligência, como o cruzamento de dados e a utilização de algoritmos para prever padrões de atuação de organizações criminosas, contribui para tornar a repressão mais eficiente e preventiva.

98276239072 - FABIANO CARBONELL DA SILVA

Não é assinante?

Confira nossos planos, tenha acesso a milhares de cursos e participe gratuitamente dos projetos exclusivos. Clique no link!

http://estrategi.ac/assinaturas

Conheça nosso sistema de questões

Estratégia Questões nasceu maior do que todos os concorrentes, com mais questões cadastradas e mais soluções por professores. Clique no link e conheça!

http://estrategi.ac/ok1zt0

ESSA LEI TODO MUNDO CONHECE:
PIRATARIA É CRIME.

Mas é sempre bom revisar o porquê e como você pode ser prejudicado com essa prática.

1. Professor investe seu tempo para elaborar os cursos e o site os coloca à venda.

2. Pirata divulga ilicitamente (grupos de rateio), utilizando-se do anonimato, nomes falsos ou laranjas (geralmente o pirata se anuncia como formador de "grupos solidários" de rateio que não visam lucro).

3. Pirata cria alunos fake praticando falsidade ideológica, comprando cursos do site em nome de pessoas aleatórias (usando nome, CPF, endereço e telefone de terceiros sem autorização).

4. Pirata compra, muitas vezes, clonando cartões de crédito (por vezes o sistema anti-fraude não consegue identificar o golpe a tempo).

5. Pirata fere os Termos de Uso, adultera as aulas e retira a identificação dos arquivos PDF (justamente porque a atividade é ilegal e ele não quer que seus fakes sejam identificados).

6. Pirata revende as aulas protegidas por direitos autorais, praticando concorrência desleal e em flagrante desrespeito à Lei de Direitos Autorais (Lei 9.610/98).

7. Concurseiro(a) desinformado participa de rateio, achando que nada disso está acontecendo e esperando se tornar servidor público para exigir o cumprimento das leis.

8. O professor que elaborou o curso não ganha nada, o site não recebe nada, e a pessoa que praticou todos os ilícitos anteriores (pirata) fica com o lucro.

Deixando de lado esse mar de sujeira, aproveitamos para agradecer a todos que adquirem os cursos honestamente e permitem que o site continue existindo.