Estratégia Concursos

3ª Rodada Polícia Federal (Agente de Polícia)

Polícia Federal (Agente de Polícia)

Rodadas Avançadas de Simulados

Autor:

Marcus Vinicius Oliveira de Toloza

06 de Abril de 2025

98276239072 - FABIANO CARBONELL DA SILVA

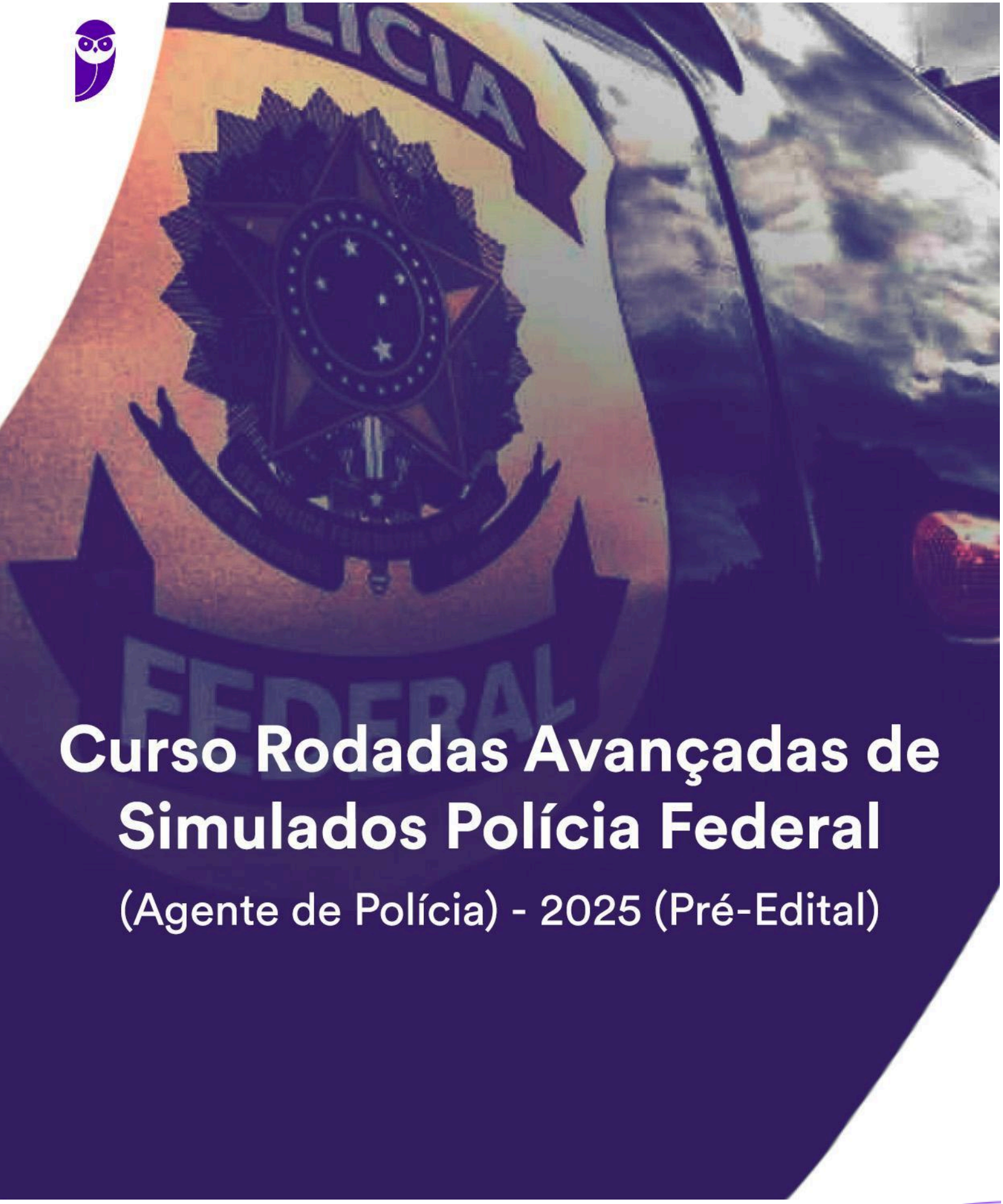

Curso Rodadas Avançadas de Simulados Polícia Federal

(Agente de Polícia) - 2025 (Pré-Edital)

98276239072 - FABIANO CARBONELL DA SILVA

Gabarito Preliminar

Rodada Avançada Polícia Federal (Agente de Polícia)

01	ERRADO	**21**	CERTO	**41**	ERRADO	**61**	ERRADO	**81**	CERTO	**101**	CERTO
02	CERTO	**22**	ERRADO	**42**	CERTO	**62**	ERRADO	**82**	ERRADO	**102**	ERRADO
03	CERTO	**23**	CERTO	**43**	CERTO	**63**	CERTO	**83**	ERRADO	**103**	CERTO
04	ERRADO	**24**	ERRADO	**44**	CERTO	**64**	ERRADO	**84**	CERTO	**104**	CERTO
05	ERRADO	**25**	CERTO	**45**	ERRADO	**65**	CERTO	**85**	CERTO	**105**	CERTO
06	CERTO	**26**	CERTO	**46**	ERRADO	**66**	CERTO	**86**	ERRADO	**106**	CERTO
07	CERTO	**27**	ERRADO	**47**	ERRADO	**67**	ERRADO	**87**	ERRADO	**107**	ERRADO
08	ERRADO	**28**	ERRADO	**48**	CERTO	**68**	ERRADO	**88**	CERTO	**108**	CERTO
09	ERRADO	**29**	ERRADO	**49**	ERRADO	**69**	CERTO	**89**	CERTO	**109**	ERRADO
10	ERRADO	**30**	CERTO	**50**	ERRADO	**70**	CERTO	**90**	CERTO	**110**	ERRADO
11	CERTO	**31**	CERTO	**51**	CERTO	**71**	ERRADO	**91**	CERTO	**111**	ERRADO
12	CERTO	**32**	ERRADO	**52**	CERTO	**72**	CERTO	**92**	ERRADO	**112**	CERTO
13	ERRADO	**33**	ERRADO	**53**	CERTO	**73**	CERTO	**93**	CERTO	**113**	ERRADO
14	ERRADO	**34**	CERTO	**54**	CERTO	**74**	CERTO	**94**	CERTO	**114**	ERRADO
15	CERTO	**35**	CERTO	**55**	ERRADO	**75**	CERTO	**95**	ERRADO	**115**	CERTO
16	CERTO	**36**	CERTO	**56**	CERTO	**76**	ERRADO	**96**	CERTO	**116**	CERTO
17	CERTO	**37**	ERRADO	**57**	ERRADO	**77**	ERRADO	**97**	CERTO	**117**	CERTO
18	ERRADO	**38**	CERTO	**58**	CERTO	**78**	ERRADO	**98**	ERRADO	**118**	ERRADO
19	CERTO	**39**	ERRADO	**59**	ERRADO	**79**	CERTO	**99**	ERRADO	**119**	ERRADO
20	ERRADO	**40**	CERTO	**60**	ERRADO	**80**	ERRADO	**100**	ERRADO	**120**	CERTO

Ranking

Clique no link para visualizar o ranking ou copie e cole no seu navegador.

http://estrategi.ac/rv82ws

O que você achou deste simulado?

Conte-nos como foi sua experiência ao fazer este simulado.
Sua opinião é muito importante para nós!

https://forms.gle/ZquhFz7Kx7jG8Fyu7

Gabarito definitivo e relatório de desempenho

*Ao final de **quinta-feira (10/04)**, o gabarito definitivo, o ranking geral e os relatórios detalhados de desempenho serão liberados na sua área do aluno.*

98276239072 - FABIANO CARBONELL DA SILVA

RECURSOS

*O prazo para enviar recursos se encerra na **terça-feira (08/04)**, às **12:00h**.*

http://estrategi.ac/4jd81r

98276239072 - FABIANO CARBONELL DA SILVA

-- BLOCO I --

LÍNGUA PORTUGUESA + REDAÇÃO OFICIAL

Texto 1

Existe um segredo para a felicidade? Esse estudo pode dar uma dica

Uma pesquisa da Universidade de Harvard que acontece há 80 anos encontrou um fator-chave para a felicidade e o envelhecimento saudável.

Um estudo da Universidade de Harvard sobre o desenvolvimento adulto encontrou o que pode ser o segredo para uma vida longa, saudável e feliz. A pesquisa, realizada pela Escola de Medicina de Harvard, começou em 1938. A ideia original era acompanhar a vida de 268 alunos da universidade a fim de identificar pistas dos fatores que podem levar a uma vida feliz. Durante as décadas seguintes, os grupos de controle se expandiram. Hoje, a pesquisa acompanha mais de 2 mil indivíduos.

Ao longo dos últimos 80 anos, os pesquisadores estudaram o histórico de saúde, como hábitos de fumo e consumo de álcool, assim como elementos mais amplos de suas vidas. As análises incluíram os triunfos e fracassos na carreira e no casamento dos participantes, por exemplo. Quando os pesquisadores reuniram os dados, a descoberta foi que os relacionamentos próximos, mais do que dinheiro ou fama, são o que mantém as pessoas felizes ao longo de suas vidas.

De acordo com o estudo, aqueles que mantiveram relacionamentos calorosos conseguiram viver mais e mais felizes, enquanto que os solitários muitas vezes morreram mais cedo. Segundo os responsáveis pela pesquisa, os laços que as pessoas mantêm durante a vida ajudam a retardar o declínio mental e físico, além de proteger contra altos níveis de estresse gerados por descontentamentos da vida.

No estudo, as pessoas que estavam mais satisfeitas em seus relacionamentos aos 50 anos eram as mais saudáveis aos 80 anos. Os pesquisadores chegaram à conclusão que a qualidade dos relacionamentos – conjugais, família ou amigos – são melhores indicadores de vidas longas e felizes do que a classe social, o QI (quociente de inteligência) ou mesmo os genes.

Em contrapartida, o efeito da falta desses relacionamentos para a saúde foi comparado a hábitos como fumar ou consumo excessivo de álcool. “A solidão mata”, afirma Robert Waldinger, diretor do estudo, psiquiatra do Hospital Geral de Massachusetts e professor de psiquiatria em Harvard.

Internet: <nationalgeographicbrasil.com> (com adaptações).

Com base nas ideias veiculadas no texto, julgue os itens a seguir.

1. A partir da leitura do texto, é possível afirmar que o estudo realizado pela Universidade de Harvard sobre o desenvolvimento adulto tem como foco principal a relação entre riqueza e felicidade, analisando como o acúmulo de bens materiais impacta na qualidade de vida dos participantes.

Gabarito: Errado

Comentário: O item sugere que o estudo tem como foco a relação entre riqueza e felicidade, analisando o impacto do acúmulo de bens materiais na qualidade de vida. No entanto, o texto **contradiz essa afirmação**. Observe:

- “*Quando os pesquisadores reuniram os dados, a descoberta foi que os relacionamentos próximos, mais do que dinheiro ou fama, são o que mantém as pessoas felizes ao longo de suas vidas*.” (**parágrafo 2**)

Logo, o estudo deixa claro que fatores materiais, como riqueza e status social, <u>não são os principais responsáveis</u> pela felicidade, e sim **os relacionamentos interpessoais**.

2. Com base na argumentação do texto, a tese central defendida pelo estudo da Universidade de Harvard está relacionada ao fato de que os relacionamentos interpessoais desempenham um papel crucial na longevidade e na felicidade das pessoas, sendo mais determinantes que fatores como classe social ou inteligência.

Gabarito: Certo

Comentário: O item afirma que os relacionamentos interpessoais desempenham um papel crucial na

98276239072 - FABIANO CARBONELL DA SILVA

longevidade e na felicidade, sendo mais determinantes que fatores como classe social ou inteligência, o que **corresponde exatamente à tese defendida no estudo**. Veja:

- "*Quando os pesquisadores reuniram os dados, a descoberta foi que os relacionamentos próximos, mais do que dinheiro ou fama, são o que mantém as pessoas felizes ao longo de suas vidas.*" (**parágrafo 2**)
- "*No estudo, as pessoas que estavam mais satisfeitas em seus relacionamentos aos 50 anos eram as mais saudáveis aos 80 anos.*" (**parágrafo 4**)
- "*Os pesquisadores chegaram à conclusão que a qualidade dos relacionamentos – conjugais, família ou amigos – são melhores indicadores de vidas longas e felizes do que a classe social, o QI (quociente de inteligência) ou mesmo os genes.*" (**parágrafo 4**)

Portanto, a pesquisa sustenta que as conexões sociais são fundamentais para o bem-estar humano, influenciando até mais do que fatores biológicos ou socioeconômicos.

3. De acordo com o texto, o isolamento social tem impactos negativos comparáveis aos de hábitos prejudiciais à saúde, como o consumo excessivo de álcool e o tabagismo.

Gabarito: Certo

Comentário: O item afirma que o isolamento social tem impactos negativos comparáveis aos de hábitos prejudiciais à saúde, como o consumo excessivo de álcool e o tabagismo, e essa é uma conclusão que o próprio estudo apresenta. Observe:

- "*Em contrapartida, o efeito da falta desses relacionamentos para a saúde foi comparado a hábitos como fumar ou consumo excessivo de álcool.*" (**parágrafo 5**)
- "*A solidão mata", afirma Robert Waldinger, diretor do estudo, psiquiatra do Hospital Geral de Massachusetts e professor de psiquiatria em Harvard.*" (**parágrafo 5**)

Observe que o texto estabelece uma **relação direta** entre solidão e problemas de saúde, equiparando seu impacto ao de hábitos amplamente reconhecidos como prejudiciais, como o tabagismo e o alcoolismo. Desse modo, a afirmativa está correta.

4. A citação de Waldinger (segundo período do quinto parágrafo) enfatiza que a solidão pode ser evitada por meio da estabilidade financeira, pois indivíduos ricos são naturalmente mais sociáveis e felizes.

Gabarito: Errado

Comentário: O item sugere que a citação de Waldinger enfatiza que a solidão pode ser evitada por meio da estabilidade financeira, pois indivíduos ricos são naturalmente mais sociáveis e felizes. No entanto, o estudo **contraria essa ideia** ao mostrar que riqueza e fama não são determinantes para a felicidade. Veja:

- "*Quando os pesquisadores reuniram os dados, a descoberta foi que os relacionamentos próximos, mais do que dinheiro ou fama, são o que mantém as pessoas felizes ao longo de suas vidas.*" (**parágrafo 2**)

Observe que o texto deixa claro que dinheiro e fama não garantem felicidade e que o fator determinante para o bem-estar é a **qualidade dos relacionamentos interpessoais**. Assim sendo, a assertiva está incorreta.

5. O emprego do hífen na palavra "fator-chave" (subtítulo) justifica-se pela mesma regra que determina o emprego do hífen em **erva-doce**.

Gabarito: Errado

Comentário: Na verdade, os termos seguem regras diferentes. Veja:

- **fator-chave**: A regra estabelece o seguinte: emprega-se o hífen nas **palavras compostas por**

98276239072 - FABIANO CARBONELL DA SILVA

justaposição que não contêm formas de ligação e cujos elementos, de natureza nominal, adjetival, numeral ou verbal, constituem uma unidade sintagmática e semântica e mantêm acento próprio, podendo dar-se o caso de o primeiro elemento estar reduzido: *ano-luz, arcebispo-bispo, arco-íris, decreto-lei, és-sueste, médico-cirurgião, rainha-cláudia, tenente-coronel, tio-avô, turma-piloto; alcaide-mor, amor-perfeito, guarda-noturno, mato-grossense, norte-americano, porto-alegrense, sul-africano; afro-asiático, afro-luso-brasileiro, azul-escuro, luso-brasileiro, primeiro-ministro, primeiro-sargento, primo-infecção, segunda-feira; conta-gotas, finca-pé, guarda-chuva*;

- **erva-doce**: a regra estabelece que os nomes das espécies animais e vegetais recebem hífen, estando ou não ligados por preposição ou outro elemento.

6. Sem prejuízo da correção gramatical e da coerência das ideias do texto, a forma verbal "foi" (primeiro período do quinto parágrafo) poderia ser substituída por **era**.

Gabarito: Certo

Comentário: Isso mesmo. Veja que a questão não falou de sentido, mas sim de **correção gramatical e coerência**. Nesse sentido, a coerência refere-se à consistência lógica e à conexão das ideias em um texto, em um discurso ou em um argumento, ou seja, um texto coerente possui uma sequência lógica de pensamentos e de informações que se encaixam de forma harmoniosa, evitando contradições ou lacunas de compreensão.

Por outro lado, o **sentido** diz respeito à compreensão ou ao significado das palavras, das frases ou das expressões em um contexto específico. É a interpretação que se dá ao conteúdo linguístico com base no conhecimento prévio, nas relações semânticas e na estrutura da língua. Um exemplo bobo que pode ajudar nisso é o seguinte:

- "*Está muito frio hoje, **por isso** Vitor passou no concurso.*"

Aqui, apesar de haver correção gramatical, não há coerência, porque não há uma relação lógica direta entre o clima frio e o sucesso de Vitor no concurso.

Agora vejamos o que a banca apresenta:

- "*Em contrapartida, o efeito da falta desses relacionamentos para a saúde **foi** comparado a hábitos como fumar ou consumo excessivo de álcool.*" = ação que aconteceu em um determinado momento no passado;
- "*Em contrapartida, o efeito da falta desses relacionamentos para a saúde **era** comparado a hábitos como fumar ou consumo excessivo de álcool.*" = ação anterior ao momento da fala e que, no tempo em que ocorreu, não foi finalizada ou interrompida por outro acontecimento.

No contexto apresentado pela banca, ainda que o sentido seja alterado, há coerência nas ideias apresentadas e a correção gramatical está adequada, o que foi justamente o que o examinador pediu.

7. O segmento **o que mantém as pessoas felizes ao longo de suas vidas** (terceiro período do segundo parágrafo), quanto à sintaxe, é classificada como uma oração subordinada substantiva predicativa.

Gabarito: Certo

Comentário: Isso mesmo. Em "*Quando os pesquisadores reuniram os dados, a descoberta foi que **os relacionamentos próximos**, mais do que dinheiro ou fama, **são** **o que mantém as pessoas felizes ao longo de suas vidas**.*", o trecho "**o que mantém as pessoas felizes ao longo de suas vidas**" está relacionado ao sujeito da oração "**os relacionamentos próximos**", mas como temos a presença de um verbo de ligação ("**são**"), não há que se falar em objeto direto e sim em **predicativo do sujeito**. Uma vez que o trecho apresenta um verbo, temos uma oração subordinada substantiva predicativa.

98276239072 - FABIANO CARBONELL DA SILVA

8. Seria correto o emprego do sinal indicativo de crase no vocábulo "a" em "a uma vida feliz" (terceiro período do primeiro parágrafo).

Gabarito: Errado

Comentário: A **crase** é a fusão da preposição "**a**" e do artigo "**a(s)**", resultando em "**à(s)**". No caso, a questão exige conhecimentos sobre as proibições relacionadas ao emprego do sinal indicativo de crase. Nesse sentido, a crase é proibida:

- antes termo masculino;
- antes de palavras femininas no plural que são precedidas apenas pela preposição "**a**";
- antes do termo "**uma**";
- antes de pronome de tratamento;
- palavra com sentido **genérico/indefinido**;
- antes do pronome "**cujo**";
- entre palavras repetidas;
- após preposições;
- antes de verbos;
- antes dos pronomes *isso, este, esta, esse, essa*;
- antes de pronomes pessoais do caso reto (*eu, tu, ele, nós, vós, eles*) e do caso oblíquo (*me, mim, comigo, te, ti, contigo, se, si, o, lhe*).

Por isso, ao dizer que seria correto o emprego do sinal indicativo de crase no vocábulo "**a**" em "**a uma vida feliz**", o item está incorreto, porque o sinal indicativo de crase antes do termo "**uma**" é proibido.

9. Entende-se, pelos sentidos do texto, que o vocábulo 'suas' (primeiro período do segundo parágrafo) remete a pesquisadores.

Gabarito: Errado

Comentário: Na verdade, o pronome "**suas**" retoma "**mais de 2 mil indivíduos**" mencionado no parágrafo anterior (**parágrafo 1**). Veja:

- **(1)** *Um estudo da Universidade de Harvard sobre o desenvolvimento adulto encontrou o que pode ser o segredo para uma vida longa, saudável e feliz. A pesquisa, realizada pela Escola de Medicina de Harvard, começou em 1938. A ideia original era acompanhar a vida de 268 alunos da universidade a fim de identificar pistas dos fatores que podem levar a uma vida feliz. Durante as décadas seguintes, os grupos de controle se expandiram. Hoje, a pesquisa acompanha* ***mais de 2 mil indivíduos****.*
- **(2)** *Ao longo dos últimos 80 anos, os pesquisadores estudaram o histórico de saúde, como hábitos de fumo e consumo de álcool, assim como elementos mais amplos de* ***suas vidas*** *(****as vidas dos mais de 2 mil indivíduos****).*

Texto 2

Tecendo a manhã

Um galo sozinho não tece uma manhã:
ele precisará sempre de outros galos.

De um que apanhe esse grito que ele
e o lance a outro; de um outro galo
que apanhe o grito de um galo antes
e o lance a outro; e de outros galos
que com muitos outros galos se cruzem
os fios de sol de seus gritos de galo,
para que a manhã, desde uma teia tênue,
se vá tecendo, entre todos os galos.

E se encorpando em tela, entre todos,
se erguendo tenda, onde entrem todos,
se entretendendo para todos, no toldo
(a manhã) que plana livre de armação.
A manhã, toldo de um tecido tão aéreo
que, tecido, se eleva por si: luz balão.

João Cabral de Melo Neto

Com base nas ideias veiculadas no texto, julgue os itens a seguir.

10. Predomina no texto o tipo textual injuntivo.

Gabarito: Errado

98276239072 - FABIANO CARBONELL DA SILVA

Comentário: A tipologia **injuntiva** é definida por sua função pragmática de orientar ou instruir, frequentemente por meio de verbos no imperativo ou na forma de comandos explícitos, como ocorre em *manuais, receitas, prescrições médicas e regulamentos*. No texto analisado, não há nenhum trecho que cumpra essa função. Ou seja, cada verso é construído a partir de uma imagem poética da manhã sendo "**tecida**" pelo canto dos galos, utilizando recursos imagéticos e metáforas para descrever esse processo de forma visual e sensorial. Logo, a estrutura do texto não apresenta uma narrativa com acontecimentos encadeados nem um argumento desenvolvido, mas sim uma **descrição de um fenômeno metafórico**.

Em acréscimo, também há traços de exposição, já que o poema apresenta uma ideia central (*a construção coletiva da manhã*) e a desenvolve com **encadeamento lógico**, explicando como os galos contribuem para esse processo. No entanto, a predominância descritiva se mantém, pois o texto foca na construção de imagens e na sugestão de sensações.

11. O poema reforça a ideia de que a criação de algo significativo é um processo coletivo, e que a individualidade isolada não tem força para transformar a realidade.

Gabarito: Certo

Comentário: Isso mesmo, o item está correto, porque sintetiza com precisão a principal mensagem do poema: **a valorização da coletividade na construção de algo maior**. Essa ideia é demonstrada logo nos versos iniciais:

"*Um galo sozinho não tece uma manhã:*

ele precisará sempre de outros galos."

Veja que o verbo "**tecer**" sugere um trabalho minucioso, em que diferentes elementos se entrelaçam para produzir um resultado concreto. No caso do poema, os "**fios de sol**" criam uma "**teia tênue**", que se fortalece na medida em que mais galos participam do processo. Isso reforça a ideia de que a construção da manhã (metáfora para qualquer grande realização) não é uma obra individual, mas sim o resultado da colaboração de muitos.

12. O poema desenvolve uma metáfora que relaciona o canto do galo à construção progressiva da manhã, enfatizando a necessidade de uma ação coletiva para que a manhã se concretize.

Gabarito: Certo

Comentário: Isso mesmo. O poema trabalha com uma **metáfora central** em que o canto dos galos é **comparado à tecitura da manhã**, sugerindo a construção colaborativa do amanhecer. Esse sentido é evidenciado em versos como "*De um que apanhe esse grito que ele / e o lance a outro*" e "*para que a manhã, desde uma teia tênue, / se vá tecendo, entre todos os galos*".

13. O poema reforça um lirismo romântico, caracterizado por um tom melancólico e introspectivo, no qual a manhã é vista como um reflexo da alma do eu-lírico.

Gabarito: Errado

Comentário: O lirismo de João Cabral se opõe ao romantismo, pois ele **rejeita a subjetividade**, a introspecção e o sentimentalismo exacerbado. Ou seja, o poema não trata a manhã como uma projeção da alma do eu-lírico, mas sim como um fenômeno coletivo, construído pelo canto dos galos. Nesse sentido, seu lirismo é mais racional do que emocional, mais estrutural do que sentimental, aproximando-se do racionalismo da poesia concreta e do modernismo da geração de 45.

14. O autor apresenta um tom confessional, ao compartilhar suas angústias e seus sentimentos em relação ao amanhecer.

Gabarito: Errado

98276239072 - FABIANO CARBONELL DA SILVA

Comentário: O poema não apresenta um tom confessional, pois não há a presença de um "**eu**" que expresse experiências íntimas ou reflexões pessoais. Em vez disso, o autor se afasta da introspecção e da confissão poética, comuns em outros estilos de poesia, como no Modernismo da primeira fase ou com os poetas românticos. Logo, a construção do poema é **impessoal e objetiva**, estruturada por imagens concretas.

15. No último verso do poema, a manhã é comparada a uma "luz balão", enfatizando a leveza e a fluidez da manhã, que se ergue de maneira autônoma após ser tecida pelos cantos dos galos.

Gabarito: Certo

Comentário: O item está correto, porque interpreta com precisão a metáfora "luz balão" no contexto do poema. Observe:

- "*A manhã, toldo de um tecido tão aéreo / que, tecido, se eleva por si: luz balão*."

Aqui, há a construção de uma imagem em que a manhã, após ser tecida coletivamente pelos cantos dos galos, torna-se **leve o suficiente para se erguer sozinha**, como um balão luminoso. A referência à "**luz**" reforça essa ideia de ascensão, pois a luz do amanhecer dissipa a escuridão e se espalha naturalmente pelo céu.

Além disso, o verso "**se eleva por si**" reforça a ideia de autonomia da manhã, mas isso não significa que ela tenha surgido sem intervenção. Pelo contrário, ela foi tecida pelos galos, e só depois dessa ação coletiva é que adquire leveza e passa a existir como "**luz balão**".

16. A expressão "tão… que" (dois últimos versos do poema) introduz, na oração em que se insere, valor de consequência, podendo ser corretamente substituída por **tanto… que**.

Gabarito: Certo

Comentário: A questão trata do uso das **conjunções adverbiais subordinativas**. Por isso, faremos uma breve revisão sobre o assunto a fim de entender o que se pede.

As conjunções subordinativas podem ser:

* **causais**: conferem ideia de causa. São elas: *por isso que, pois, porque, uma vez que, visto que, como (com sentido de porque), porquanto, pois que*...

Ex.: **Como** faltava muito às aulas, não sabia nada do conteúdo.

* **consecutivas**: conferem ideia de consequência. São elas: *de modo que, de forma que, de maneira que, de sorte que, que* (combinado com *tal, tanto, tão*).

Ex.: Foi tão ágil e rápida a saída **que** Jandira achou graça. (Cyro dos Anjos em "O amanuense Belmiro")

* **comparativas**: conferem ideia de comparação. São elas: *como, assim como, como se, que nem, quanto* (depois de *tanto*)...

Ex.: Apareceu **como** se viesse de outro mundo.

* **condicionais**: conferem ideia de hipótese. São elas: *salvo se, contanto que, a menos que, desde que, a não ser que, se, caso, quando*...

Ex.: **Caso** você não possa ir, remarcaremos a reunião.

* **conformativas**: conferem ideia de conformidade. São elas: *segundo, consoante, conforme*...

Ex.: **Segundo** dados da pesquisa, a violência diminuiu 5%.

* **finais**: conferem ideia de finalidade. São elas: *para, para que, a fim de que, porque = para que*...

Ex.: Ele tentou chegar mais cedo **para que** pudesse terminar o trabalho.

* **proporcionais**: conferem ideia de simultaneidade de ações. São elas: *à medida que, quanto menos, ao passo que, à proporção que, quanto mais, enquanto*...

Ex.: **À medida que** o tempo passava, mais desconfiado o jovem ficava.

* **temporais**: conferem ideia de circunstância de tempo. São elas: *quando, sempre que, depois que, antes que, logo que, cada vez que, assim que,*

98276239072 - FABIANO CARBONELL DA SILVA

desde que, até que, todas as vezes que, apenas, mal, que (desde que)...

Ex.: **Sempre que** posso, vou à livraria.

* **concessivas**: conferem ideia de contrariedade. São elas: *ainda que, apesar de, (mesmo) mesmo que, por mais que, embora, conquanto, nem que…*

Ex.: Estudo, **mesmo** quando estou cansada.

Com isso, vemos que a expressão "**tão... que**" dá início a uma oração com ideia de **consequência**. Veja:

"*A manhã, toldo de um tecido tão aéreo*

***que**, tecido, se eleva por si: luz balão.*"

17. Estaria mantida a correção gramatical do décimo verso caso a partícula "se", em "se vá tecendo", fosse deslocada para depois do verbo "tecendo" — **vá tecendo-se**.

Gabarito: Certo

Comentário: Vejamos o caso em que a partícula "**se**" está inserida:

De um que apanhe esse grito que ele

e o lance a outro; de um outro galo

que apanhe o grito de um galo antes

e o lance a outro; e de outros galos

que com muitos outros galos se cruzem

os fios de sol de seus gritos de galo,

para que a manhã, desde uma teia tênue,

***se vá tecendo**, entre todos os galos.*

No trecho "*... para que a manhã, desde uma teia tênue, / **se vá tecendo**, entre todos os galos.*", a expressão "**vá tecendo**" constitui uma locução verbal formada por um verbo auxiliar (**vá**) e um verbo principal no gerúndio (**tecendo**). Sobre esse tipo de construção, a gramática esclarece que, mesmo com a presença de elementos que atraem o pronome oblíquo, nada impede a colocação desse pronome após a locução verbal.

18. No verso catorze, a substituição dos parênteses por travessões prejudicaria a correção gramatical do texto.

Gabarito: Errado

Comentário: Evanildo Bechara, em sua obra *Moderna Gramática Portuguesa*, explica que o travessão pode ser empregado no lugar dos parênteses para **indicar uma expressão explicativa**. Ou seja, elementos explicativos (como ocorre em "*se entretendendo para todos, no toldo/ **(a manhã)** que plana livre de armação.*") em uma frase podem ser isolados por *vírgulas, travessões ou parênteses*.

No que se refere à redação oficial, julgue os itens a seguir.

19. Em relação às comunicações oficiais, para que o texto esteja adequado à situação comunicativa, deve-se considerar a intenção do emissor e a finalidade do documento.

Gabarito: Certo

Comentário: Isso mesmo. Para o Manual de Redação da Presidência da República, a finalidade da língua é **comunicar**, quer pela fala, quer pela escrita. Para que haja comunicação, são necessários:

a) alguém que comunique;

b) algo a ser comunicado;

c) alguém que receba essa comunicação.

No caso da **redação oficial**, quem comunica é **sempre** o **serviço público** (este/esta ou aquele/aquela Ministério, Secretaria, Departamento, Divisão, Serviço, Seção); o que se comunica é sempre **algum assunto relativo às atribuições do órgão que comunica**; e o destinatário dessa comunicação é o público, uma instituição privada ou **outro órgão ou entidade pública**, do Poder Executivo ou dos outros Poderes. Além disso, deve-se considerar a intenção do emissor e a **finalidade do documento**, para que o texto esteja adequado à situação comunicativa.

98276239072 - FABIANO CARBONELL DA SILVA

20. Em relação às correspondências oficiais, conforme o Manual de Redação da Presidência da República, a padronização diz respeito à civilidade no próprio enfoque dado ao assunto do qual cuida a comunicação.

Gabarito: Errado

Comentário: O item está incorreto. Na verdade, a **padronização** refere-se à formatação do texto, sem englobar o tratamento utilizado em uma comunicação oficial. Conforme o Manual, é essencial que o redator *observe todas as características da redação oficial e também cuide da apresentação dos textos*.

21. A concisão diz respeito à capacidade de transmitir informações de forma sucinta e direta, sem excesso de palavras ou detalhes desnecessários.

Gabarito: Certo

Comentário: Isso mesmo. A **concisão** diz respeito à capacidade de transmitir informações de forma sucinta e direta, **sem excesso de palavras ou detalhes desnecessários**. Na redação oficial, é importante evitar o uso de expressões prolixas ou repetitivas que tornem o texto redundante e cansativo para o leitor, pois uma redação concisa é **mais eficiente e facilita a compreensão** das informações apresentadas. Logo, trata-se de um importante recurso para garantir a eficácia da comunicação na redação oficial que está elencado no Manual de Redação da Presidência da República conforme disposto a seguir:

- *clareza e precisão;*
- *objetividade;*
- ***concisão;***
- *coesão e coerência;*
- *impessoalidade;*
- *formalidade e padronização; e*
- *uso da norma padrão da língua portuguesa.*

22. Em comunicações oficiais, está abolido o uso de Digníssimo (DD) e de Ilustríssimo (Ilmo.). No entanto, o uso de "doutor" e "senhor" é permitido.

Gabarito: Errado

Comentário: Na verdade, o Manual dispõe o seguinte:

- *Em comunicações oficiais, está abolido o uso de Digníssimo (DD) e de Ilustríssimo (Ilmo.). **Evite-se o uso de "doutor" indiscriminadamente**. O tratamento por meio de Senhor confere a formalidade desejada.*

23. Até a segunda edição do Manual de Redação da Presidência da República, havia três tipos de expedientes que se diferenciavam antes pela finalidade do que pela forma: o ofício, o aviso e o memorando. No entanto, visando uniformizá-los, adotou-se nomenclatura e diagramação únicas, que seguem o que se chama de padrão ofício.

Gabarito: Certo

Comentário: Isso mesmo. O Manual de Redação da Presidência da República (MRPR) esclarece que, até sua segunda edição, havia três tipos de expedientes que se diferenciavam antes pela finalidade do que pela forma: o ofício, o aviso e o memorando. No entanto, com o objetivo de uniformizá-los, foram adotadas nomenclatura e diagramação únicas, que seguem o que se chama de **padrão ofício**. A distinção básica anterior entre os três era:

a) **aviso**: era expedido exclusivamente por Ministros de Estado, para autoridades de mesma hierarquia;

b) **ofício**: era expedido para e pelas demais autoridades; e

c) **memorando**: era expedido entre unidades administrativas de um mesmo órgão.

Além disso, é importante lembrar que na nova edição ficou abolida aquela distinção e passou-se a utilizar o **termo ofício nas três hipóteses**.

98276239072 - FABIANO CARBONELL DA SILVA

24. O vocativo é uma invocação ao destinatário que, nas comunicações oficiais, sempre será seguido de dois-pontos.

Gabarito: Errado

Comentário: O **vocativo**, vocábulo que vem do latim "*vocare*" (**chamar**), é um termo da oração empregado quando se quer chamar uma pessoa, um animal ou uma coisa personificada a que se dirige e é isolado por vírgulas. Nas comunicações oficiais, o vocativo segue a mesma regra gramatical e será sempre seguido de vírgula e não de dois-pontos conforme menciona o item.

DIREITO ADMINISTRATIVO

Julgue os itens seguintes, a respeito dos atos administrativos e da organização da administração pública.

25. Murilo, servidor público no exercício de suas atribuições, apreendeu medicamentos vencidos, visando proteger a saúde das pessoas. Nesse caso, a finalidade é o requisito do ato administrativo que resultou na proteção da saúde das pessoas.

Gabarito: Certo

Comentário: O que se busca com a apreensão dos medicamentos vencidos? Atender o interesse público, protegendo a saúde das pessoas. Ou seja, aqui temos a finalidade.

Analisando a questão com base nos requisitos/elementos do ato administrativo:

- Competência = Murilo é competente (no exercício de suas atribuições)
- Forma = Forma de exteriorização do ato
- Finalidade = Atender o interesse público, protegendo a saúde das pessoas.
- Motivo = A venda de remédios vencidos.
- Objeto = A apreensão dos medicamentos

26. Sociedade de economia mista é uma entidade com personalidade jurídica de direito privado, criada por meio de autorização legal e constituída sob a forma de sociedade anônima, cujas ações com direito a voto pertencem majoritariamente à União, aos estados, ao Distrito Federal, aos municípios ou a uma entidade da administração indireta.

Gabarito: Certo

Comentário: Exatamente. Sociedade de economia mista, nos termos do art. 4º da Lei nº 13.303/2016, é a entidade dotada de personalidade jurídica de direito privado, com criação autorizada por lei, sob a forma de sociedade anônima, cujas ações com direito a voto pertençam, em sua maioria, à União, aos estados, ao Distrito Federal, aos municípios ou a entidade da administração indireta.

Sobre o assunto, é importante não confundir:

Empresas Públicas:

- Capital 100% público (O capital pode ser dividido entre entes federativos ou, até mesmo entidades da Adm. Indireta, e de direito privado, desde que 100% dele seja público)
- Explora atividade econômica
- Forma de constituição: qualquer forma societária
- Exemplos: Caixa Econômica, BNDES.

Sociedade de Economia Mista:

- Capital misto (prevalecendo o capital público de 50% + 1)
- Forma de constituição: apenas na forma de Sociedade Anônima
- A maioria das ações com direito a voto pertencem ao Estado
- O Estado possui a maioria das ações, o que lhe permite interferir na administração da empresa
- Exemplos: Petrobrás, Banco do Brasil.

Quanto ao controle da administração pública, julgue o item subsequente.

98276239072 - FABIANO CARBONELL DA SILVA

27. O controle da administração pública direta sobre as fundações públicas é predominantemente formal e decorre da subordinação hierárquica.

Gabarito: Errado

Comentário: A relação entre a administração direta e a indireta se caracteriza pela vinculação, e não pela subordinação. A administração direta exerce controle finalístico, também chamado de tutela administrativa ou supervisão, sobre a indireta. Esse controle finalístico exige previsão legal expressa, que estabeleça seus limites e instrumentos.

A supervisão ministerial se refere ao controle exercido pelos entes da Administração Direta sobre os atos da Administração Indireta. Essa relação é conhecida por diversos nomes na doutrina, como controle, tutela, vinculação ou supervisão ministerial.

DIREITO CONSTITUCIONAL

No que concerne aos direitos e garantias fundamentais, julgue o item a seguir.

28. A eleição de um representante dos empregados é assegurada, pela Constituição Federal, em todas as empresas, para facilitar o diálogo direto com os empregadores, independentemente do número de funcionários.

Gabarito: Errado

Comentário: Não é independente do número de funcionários.

Nos termos da *CF/88, Art. 11. Nas empresas de <u>mais de duzentos empregados</u>, é assegurada a eleição de um representante destes com a finalidade exclusiva de promover-lhes o entendimento direto com os empregadores.*

Julgue os itens subsequentes, considerando as disposições da Constituição Federal de 1988 acerca da segurança pública e do meio ambiente.

29. À polícia federal, dirigida por delegados de polícia de carreira, incumbe, ressalvada a competência da União, a função de polícia judiciária.

Gabarito: Errado

Comentário: *CF/88, Art. 144. § 1º A polícia federal, instituída por lei como órgão permanente, organizado e mantido pela União e estruturado em carreira, destina-se a:"*

IV - <u>exercer, com exclusividade, as funções de polícia judiciária da União</u>.

Não confundir com as competências das polícias civis:

CF/88, Art. 144. § 4º Às polícias civis, dirigidas por delegados de polícia de carreira, incumbem, ressalvada a competência da União, as funções de polícia judiciária e a apuração de infrações penais, exceto as militares.

30. Independentemente da obrigação de reparar os danos causados, as condutas e atividades consideradas lesivas ao meio ambiente sujeitarão os infratores, pessoas físicas ou jurídicas, a sanções penais e administrativas.

Gabarito: Certo

Comentário: Conforme a *CF/88, Art. 225. § 3º As condutas e atividades consideradas lesivas ao meio ambiente sujeitarão os infratores, pessoas físicas ou jurídicas, a sanções penais e administrativas, independentemente da obrigação de reparar os danos causados.*

DIREITO PENAL E PROCESSUAL PENAL

Com relação à aplicação da lei penal e o fato típico e seus elementos, julgue os itens seguintes.

98276239072 - FABIANO CARBONELL DA SILVA

31. Embora cessadas as circunstâncias que a determinaram, a lei excepcional é aplicada ao fato praticado durante sua vigência.

Gabarito: Certo

Comentário: Nos termos do *CP, Art. 3º - A lei excepcional ou temporária, embora decorrido o período de sua duração ou cessadas as circunstâncias que a determinaram, aplica-se ao fato praticado durante sua vigência.*

Especial é a situação das leis intermitentes, que se dividem em leis excepcionais e leis temporárias. As leis excepcionais são aquelas que são produzidas para vigorar durante determinada situação. Por exemplo, estado de sítio, estado de guerra, ou outra situação excepcional (embora não haja data certa no calendário para sua autorrevogação). Lei temporária (em sentido estrito) é aquela que é editada para vigorar durante determinado período, certo, cuja revogação se dará automaticamente quando se atingir o termo final de vigência.

32. A legítima defesa não se aplica ao agente que tem a obrigação legal de enfrentar o perigo.

Gabarito: Errado

Comentário: Tal regra é válida para o estado de necessidade.

CP, Art. 24, § 1º - Não pode alegar estado de necessidade quem tinha o dever legal de enfrentar o perigo.

Por outro lado, quanto à legítima defesa, ainda que o agente tenha a obrigação legal de agir, poderá, sim, alegar legítima defesa. É importante lembrar ainda que, na legítima defesa, diferentemente do que ocorre no estado de necessidade, o agredido (que age em legítima defesa) não é obrigado a fugir do agressor, ainda que possa. A lei permite que o agredido revide e se proteja, ainda que lhe seja possível fugir. Ou seja, ainda que o agente pudesse optar por uma saída mais cômoda, fugindo, isso não afastará a possibilidade de reconhecimento da legítima defesa.

A respeito do inquérito policial, julgue o item seguinte.

33. Da decisão que indeferir a abertura do inquérito policial caberá recurso ao Ministério Público.

Gabarito: Errado

Comentário: *CPP, Art. 5º § 2º Do despacho que indeferir o requerimento de abertura de inquérito caberá recurso para o chefe de Polícia.*

LEGISLAÇÃO ESPECIAL

Julgue o próximo item, de acordo com a Lei nº 10.357/2001, que estabelece normas de controle e fiscalização sobre produtos químicos que possam ser destinados à elaboração ilícita de substâncias entorpecentes.

34. A pessoa física ou jurídica que exerce atividade controlada e fiscalizada tem o dever de comunicar ao Departamento de Polícia Federal, em até 24 horas, qualquer suspeita de desvio de produto químico abrangido por esta Lei.

Gabarito: Certo

Comentário: Conforme a *Lei nº 10.357/2001, Art. 11. A pessoa física ou jurídica que exerça atividade sujeita a controle e fiscalização deverá informar ao Departamento de Polícia Federal, no prazo máximo de vinte e quatro horas, qualquer suspeita de desvio de produto químico a que se refere esta Lei.*

Nos termos da Lei nº 9.455/1997, que define os crimes de tortura, julgue o item subsequente.

35. O agente que constranger alguém com emprego de grave ameaça, causando-lhe sofrimento físico ou mental, em razão de discriminação religiosa, comete crime de tortura.

Gabarito: Certo

Comentário: *Lei nº 9.455/1997, Art. 1º Constitui crime de tortura:*

98276239072 - FABIANO CARBONELL DA SILVA

I - constranger alguém com emprego de violência ou grave ameaça, causando-lhe sofrimento físico ou mental:

a) com o fim de obter informação, declaração ou confissão da vítima ou de terceira pessoa;

b) para provocar ação ou omissão de natureza criminosa;

c) em razão de discriminação racial ou religiosa;

No tocante à Lei nº 10.826/2003, julgue o item a seguir.

36. A Polícia Federal expedirá o certificado de registro de arma de fogo após autorização do Sistema Nacional de Armas.

Gabarito: Certo

Comentário: Conforme a Lei nº 10.826/2003:

Art. 1º O Sistema Nacional de Armas – Sinarm, instituído no Ministério da Justiça, no âmbito da Polícia Federal, tem circunscrição em todo o território nacional.

Art. 5º O certificado de Registro de Arma de Fogo, com validade em todo o território nacional, autoriza o seu proprietário a manter a arma de fogo exclusivamente no interior de sua residência ou domicílio, ou dependência desses, ou, ainda, no seu local de trabalho, desde que seja ele o titular ou o responsável legal pelo estabelecimento ou empresa.

§ 1º O certificado de registro de arma de fogo será expedido pela Polícia Federal e será precedido de autorização do Sinarm.

Sinarm autoriza -> PF expede.

ESTATÍSTICA

Um **boxplot** é uma ferramenta gráfica frequentemente utilizada na análise exploratória de dados que permite visualizar a distribuição dos dados e os valores discrepantes, assim como a distância dos valores extremos em relação à maioria dos dados.

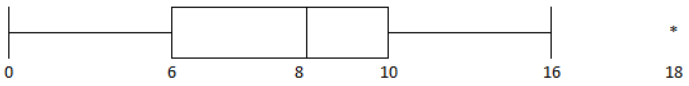

Considerando que uma variável quantitativa discreta X se distribui conforme o diagrama boxplot anterior, julgue os itens **37 e 38** a seguir.

37. O desvio quartílico da distribuição apresentada é igual a 4.

Gabarito: Errado

Comentário: Inicialmente, vejamos a seguinte indicação trazendo os elementos de um boxplot:

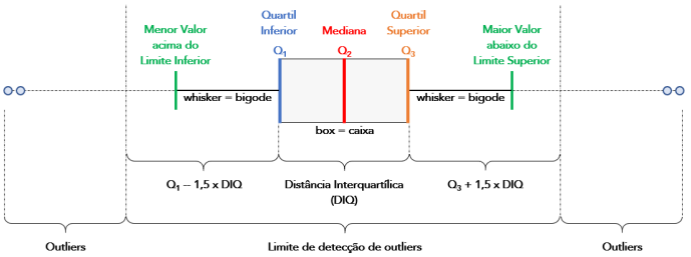

O cálculo do desvio quartílico (que não se confunde com a distância interquartílica) é feito da seguinte maneira:

$$Dq = \frac{Q3-Q1}{2} = \frac{10-6}{2} = 2$$

Portanto, o item está **ERRADO**. Perceba que a questão tentou trazer confusão entre o desvio quartílico e a distância interquartílica.

38. Um valor observado de X igual a 18, representado pelo asterisco no diagrama boxplot, é considerado outlier.

Gabarito: Certo

Comentário: Conforme visualizamos na figura anterior, o que estiver fora do limite superior será definido como Outlier. Calculando o limite superior, teríamos:

$$L.S = Q3 + 1,5 * (Q3 - Q1)$$

$$L.S = 10 + 1,5 * (10 - 6)$$

$$L.S = 16$$

Portanto, o item está **CERTO**, pois um valor de X = 18 estará fora do limite superior, ou seja, será um valor discrepante na observação.

Situação hipotética: Sendo X e Y duas variáveis aleatórias contínuas com função de densidade conjunta:

$$f(x,y) = 2x + \frac{y}{3}$$

Na qual 0 < x < 1 e 0 < y < 1.

Julgue os itens **39 a 41** a seguir.

39. X e Y são variáveis aleatórias independentes.

Gabarito: Errado

Comentário: Podemos concluir que duas variáveis são **independentes se a função densidade conjunta for igual ao produto das densidades marginais**:

$$f(x,y) = f(x) * f(y)$$

1° - Calculando a densidade marginal de x:

$$f(x) = \int_0^1 \left(2x + \frac{y}{3}\right)dy = \left[2xy + \frac{y^2}{6}\right]_0^1 = 2x(1 - 0) + \frac{1^2 - 0^2}{6}$$

$$f(x) = 2x + \frac{1}{6}$$

2° - Calculando a densidade marginal de y:

$$f(y) = \int_0^1 \left(2x + \frac{y}{3}\right)dx = \left[\frac{2x^2}{2} + \frac{yx}{3}\right]_0^1 = \frac{2}{2} + \frac{y}{3}$$

$$f(y) = \frac{y}{3} + 1$$

3° - Realizar o produto entre f(x) e f(y):

$$f(x) * f(y) = \left[2x + \frac{1}{6}\right] * \left[\frac{y}{3} + 1\right]$$

$$f(x) * f(y) = \frac{2xy}{3} + \frac{y}{18} + 2x + \frac{1}{6}$$

Conforme vimos, temos $f(x,y) \neq f(x) * f(y)$. Portanto, o item está **ERRADO**.

40. $E[Y] = \frac{11}{18}$

Gabarito: Certo

Comentário: Como já temos o valor de f(y), dado por:

$$f(y) = \frac{y}{3} + 1$$

Sabemos que E[Y] é dado por:

$$E(y) = \int_0^1 y f(y) dy$$

Substituindo:

$$E[Y] = \int_0^1 y * \left[\frac{y}{3} + 1\right]dy = \left[\frac{y^2}{3} + y\right]dy = \left[\frac{y^3}{3*3} + \frac{y^2}{2}\right]_0^1$$

$$E[Y] = \frac{1}{9} + \frac{1}{2} = \frac{2+9}{18} = \frac{11}{18}$$

Portanto, o item está **CERTO**.

41. $P(Y = 0,6)$ é superior a 45%.

Gabarito: Errado

Comentário: Sabemos que:

$$f(x,y) = 2x + \frac{y}{3}$$

$$f(y) = \frac{y}{3} + 1$$

Substituindo y = 0,6:

$$f(x, 0,6) = 2x + \frac{0,6}{3} = 2x + 0,2$$

$$f(0,6) = \frac{0,6}{3} + 1 = 1,2$$

Calculando a função densidade condicional de X, dado Y = 0,6:

$$f(0,6) = \frac{f(x,0,6)}{f(0,6)}$$

$$f(0,6) = \frac{2x+0,2}{1,2}$$

Agora, para determinarmos a probabilidade indicada, teremos:

$$P(Y = 0,6) = \int_0^{0,6} \left[\frac{2x+0,2}{1,2}\right]dx = \left[\frac{2x}{1,2} + \frac{0,2}{1,2}\right]dx = \left[\frac{2x^2}{2*1,2} + \frac{0,2x}{1,2}\right]_0^{0,6}$$

98276239072 - FABIANO CARBONELL DA SILVA

$$P(Y = 0,6) = \frac{2*0,6^2}{2*1,2} + \frac{0,2*0,6}{1,2} = 0,30 + 0,1$$

$$P(Y = 0,6) = 0,40 \; ou \; 40\%$$

Portanto, verificamos que a probabilidade indicada é inferior a 45%. Dessa forma, o item está **ERRADO**.

Situação hipotética: Uma startup verificou que o tempo de vida útil de determinado microchip segue uma distribuição exponencial com taxa de falha λ = 0,25 (ou seja, em média, o microchip falha após 4 anos).

A função densidade de probabilidade **g(t)** da distribuição exponencial, com t em anos, é dada por:

$$g(t) = \left\{\lambda . e^{-\lambda t}, \; se \; t \geq 0 \; 0, \; se \; t < 0\right\}$$

Considere e^{-1}= 0,36.

Com base na situação hipotética apresentada, julgue os itens **42 e 43** a seguir.

42. A probabilidade de o microchip falhar antes de 8 anos é inferior a 90%.

Gabarito: Certo

Comentário: Em geral, para calcular a probabilidade $P(X < x)$ para algum valor de x em uma distribuição exponencial, fazemos:

$$\boldsymbol{P(X < x) = 1 - e^{-\lambda x}}$$

Como queremos saber a probabilidade de o microchip falhar antes de 8 anos, teremos:

$$P(t < 8) = 1 - e^{-0,25*8}$$

$$P(t < 8) = 1 - e^{-2}$$

$$P(t < 8) = 1 - (0,36)^2$$

$$P(t < 8) = 1 - 0,1296$$

$$P(t < 8) = 0,8704 \; ou \; 87,04\%$$

Portanto, temos o item como **CERTO.**

43. Para a distribuição apresentada, tem-se que E(t) = 4.

Gabarito: Certo

Comentário: A média E(t) de uma variável aleatória t que segue uma distribuição exponencial com taxa de falha λ é dada pela fórmula:

$$E(t) = \frac{1}{\lambda}$$

Como a questão informou λ = 0,25,

$$E(t) = \frac{1}{0,25} = 4$$

Portanto, temos o item como **CERTO**.

Situação hipotética: A partir de um modelo de regressão linear simples, do tipo $\hat{Y}_i = \hat{\alpha} + \hat{\beta} X_i + \varepsilon_i$, em que ε_i denota erro aleatório com média nula e variância constante, em decorrência do elevado índice de defeitos apresentados nos equipamentos eletrônicos, um estatístico contratado pela loja ELETROMAIS avaliou, utilizando o método dos mínimos quadrados, a relação entre a quantidade de ventiladores portáteis que retornavam para a garantia com defeito de fábrica **Y** em relação à quantidade de ventiladores portáteis vendidos pela respectiva loja **X**. Para esse levantamento, foram retiradas sete amostras do lote desses produtos, conforme levantamento indicado na tabela a seguir.

Amostra	X	Y
n1	4	2
n2	7	4
n3	3	1
n4	6	3
n5	9	5
n6	6	3
n7	7	3

98276239072 - FABIANO CARBONELL DA SILVA

Sabe-se que o modelo apresenta coeficiente de determinação (R^2) igual a 0,94.

Considerando a situação hipotética e os conhecimentos sobre estatística, julgue os itens **44 a 48** a seguir.

44. A estimativa do intercepto ($\hat{\alpha}$) é negativa.

Gabarito: Certo

Comentário: Para a resolução da questão, utilizaremos algumas formulações pré-definidas para a regressão linear.

1° PASSO: Calcular o β

Para o cálculo do β, vamos utilizar a seguinte formulação:

$$\beta = \frac{\sum xy - n\overline{xy}}{\sum x^2 - n\overline{x}^2}$$

OBS: Há também outras formulações possíveis de empregar.

Vamos, então, acrescentar as colunas e linhas necessárias a nossa tabela:

Amostra	X	Y	XY	X²
n1	4	2	8	16
n2	7	4	28	49
n3	3	1	3	9
n4	6	3	18	36
n5	9	5	45	81
n6	6	3	18	36
n7	7	3	21	49
Total	42	21	141	276

Como

- $\sum x = 42$ e temos 7 amostras, portanto, a média $\overline{x} = 6$.
- $\sum y = 21$ e temos 7 amostras, portanto, a média $\overline{y} = 3$.
- $\sum xy = 141$.
- $\sum x^2 = 276$.
- n = 7

Substituindo:

$$\beta = \frac{141 - 7*6*3}{276 - 7*6^2}$$

$$\beta = \frac{15}{24} = \frac{5}{8} = 0,625$$

2° PASSO: Calcular o α:

Para o cálculo de α, utilizaremos a seguinte formulação:

$$\alpha = \overline{y} - \beta\overline{x}$$

OBS: Utilizamos as médias de x e y, pois temos garantia que esse ponto passa pela reta de regressão linear.

Sabemos que:

- $\overline{y}$= 3;
- $\overline{x}$= 6;
- β = 0,625

Substituindo na fórmula:

$$\alpha = 3 - 0,625 * 6$$

$$\alpha = -0,75$$

Portanto, temos o item como **CERTO.**

45. Estima-se que, na venda de 14 ventiladores portáteis, 9 deles terão a garantia por defeito de fábrica acionada.

Gabarito: Errado

Comentário: Com as informações anteriormente calculada, temos a seguinte eq. da reta de regressão:

98276239072 - FABIANO CARBONELL DA SILVA

$$\hat{Y} = -0,75 + 0,625X$$

Considerando a venda de 14 ventiladores portáteis, ou seja, X = 14, podemos encontrar a estimativa de equipamentos defeituosos de fábrica $\hat{Y}$:

$$\hat{Y} = -0,75 + 0,625 * 14$$

$$\hat{Y} = -0,75 + 8,75$$

$$\hat{Y} = 8$$

Portanto, estima-se que, dos 14 ventiladores portáteis vendidos, 8 apresentem defeito de fábrica. Dessa forma, temos o item como **ERRADO**.

46. O número de graus de liberdade dos resíduos é 6.

Gabarito: Errado

Comentário: Tenhamos em mente o seguinte:

O número de graus de liberdade do modelo de regressão é:

$$GL_{Modelo} = 2 - 1 = 1$$

O número de graus de liberdade dos resíduos é:

$$GL_{Resíduos} = n - 2$$

O número de graus de liberdade total é:

$$GL_{Total} = n - 1$$

Portanto, como temos n =7, o número de graus de liberdade dos resíduos (erros) é 7 – 2 = 5. Dessa forma, o item está **ERRADO**.

47. Conforme a propriedade da homocedasticia, um dos pressupostos básicos que deve ser atendido para o modelo de regressão linear é $E(\varepsilon i) = 0$.

Gabarito: Errado

Comentário: De acordo com **ESTRATÉGIA (2025):**

O **modelo de regressão linear** requer que sejam atendidos alguns pressupostos básicos quanto à variável aleatória εi **(erro ou desvio):**

i) $E(\varepsilon i) = 0$. A média dos erros é igual a zero. Ou seja, os desvios "para cima da reta" igualam o valor dos desvios "para baixo da reta" na média.

ii) $Var(\varepsilon i) = \sigma^2$. A variância dos erros é constante. Essa propriedade é denominada de **homocedasticia**. Isso só é possível se a variável εi tiver variância constante. Ou seja, se ela tiver sempre a mesma variância, independente de qual o valor de Xi . Quando o modelo apresenta variâncias diferentes para o erro, temos uma situação de heterocedasticia.

iii) $Cov(\varepsilon i, \varepsilon j) = 0$ *para* $i \neq j$. Os erros cometidos não são correlacionados, isto é, os desvios εi são variáveis aleatórias independentes. Quando os erros não são independentes, temos uma situação denominada de autocorrelação."

De fato, deve-se ter $E(\varepsilon i) = 0$, no entanto, esse pressuposto não guarda relação com a propriedade da homocedasticia, pois esta indica que a variância dos erros deve ser constante. Dessa forma, temos o item como **ERRADO**.

48. A correlação linear entre as variáveis x e y, designada por r, é positiva e encontra-se no intervalo 0,96 < r < 0,98.

Gabarito: Certo

Comentário: Como foi informado $R^2 = 0,94$ e sabemos que $R^2 = r^2$, teremos:

$$r^2 = 0,94$$

$$r = \sqrt{0,94}$$

Pessoal, como nos foi dado o intervalo de 0,96 e 0,98, vamos testar o quadrado desses dois valores e verificar se o valor de R^2 está inserido nele.

- $0,96^2 = 0,92$
- $0,98^2 = 0,96$

OBS: Além disso, como temos $\beta > 0$, sabemos que a correlação é positiva.

Portanto, concluímos que $0,96 < \sqrt{0,94} < 0,98$. Dessa forma, o item está **CERTO**.

RACIOCÍNIO LÓGICO

Considere as proposições P, Q, R e S a seguir:

- **P**: Pedro é um lutador de boxe argentino.
- **Q**: Queila não pratica tênis
- **R**: Renata é surfista
- **S**: Alguns skatistas não gostam de tomar água durante as provas.

Considerando que ~X representa a negação da proposição X, julgue os itens **49 a 53** a seguir.

49. Se a proposição "Renata é surfista" é verdadeira, então a proposição "Renata é uma surfista brasileira" também é verdadeira.

Gabarito: Errado

Comentário: Não necessariamente. Caso tivéssemos o oposto afirmado na questão, ou seja, se a questão afirmasse que "Renata é uma surfista brasileira", poderíamos concluir que "Renata é uma surfista". No entanto, o oposto não é válido, pois estaríamos extrapolando o que nos foi informado.

Dessa forma, temos o item como **ERRADO**.

50. A proposição "Queila praticar tênis implica Renata ser surfista" pode ser representada simbolicamente por "Q → R".

Gabarito: Errado

Comentário: Sabemos que a proposição Q é "Queila **não** pratica tênis" e a proposição R é "Renata é surfista", portanto, a proposição apresentada seria:

$$\sim Q \rightarrow R$$

Temos, então, o item como **ERRADO**.

51. A sentença "A pergunta 'Por que alguns skatistas não gostam de tomar água durante as provas?' será desvendada no Globo Esporte de domingo." é uma proposição lógica.

Gabarito: Certo

Comentário: Modelo interessante de questão cobrado recentemente pelo CEBRASPE. Percebam que a um olhar inicial, tenderíamos a afirmar que não se trata de uma proposição lógica, pois há uma parte interrogativa. No entanto, precisamos entender o que de fato está sendo afirmado. Vejamos a sentença apresentada:

A sentença "A pergunta 'Por que alguns skatistas não gostam de tomar água durante as provas?' será desvendada no Globo Esporte de domingo." é uma proposição lógica.

Notem que podemos substituir tudo isso que está destacado em vermelho por "X", reescrevendo:

A sentença "A pergunta X será desvendada no Globo Esporte de domingo." é uma proposição lógica.

Perceberam que estamos, de fato, diante de uma proposição lógica? Podemos julgá-la como V ou F, há presença de verbo e tem sentido explícito.

OBS: Note que a pergunta apresentada era somente um subitem da sentença realmente apresentada como uma proposição lógica.

Dessa forma, temos que o item está **CERTO**.

52. A proposição "(P v ~Q) → R" é logicamente equivalente a "(~R) → (Q ∧ ~P)".

Gabarito: Certo

Comentário: Utilizando a equivalência contrapositiva, devemos negar ambos os termos e invertê-los na condicional, logo:

~(P v ~Q) ≡ (~P ∧ Q) ≡ (Q ∧ ~P)

Portanto, ficamos com:

(~R) → (Q ∧ ~P).

Temos o item como **CERTO**.

53. As proposições P, Q, R e S são proposições simples.

Gabarito: Certo

Comentário: De fato, temos proposições simples em todos os casos. Vejamos a análise dos verbos principais:

98276239072 - FABIANO CARBONELL DA SILVA

- **P**: Pedro é um lutador de boxe argentino.
- **Q**: Queila não pratica tênis
- **R**: Renata é surfista
- **S**: Alguns skatistas não gostam de tomar água durante as provas.

Portanto, temos o item como **CERTO**.

Considere a proposição composta a seguir:

(P v Q) → (P v (Q v R))

Julgue o item a seguir, com base nas estruturas lógicas e lógica sentencial.

54. A última coluna da tabela-verdade da proposição composta apresentada possui 8 valores verdadeiros.

Gabarito: Certo

Comentário: Pessoal, podemos resolver essa questão de duas formas:

1ª Forma: analisando o número de linhas da tabela-verdade (que é $2^3 = 8$) e verificando que se trata de uma tautologia, pois temos disjunções inclusivas em ambos os lados da condicional, com a presença das proposições P e Q em ambos os lados.

2ª Forma: montando a tabela-verdade. Vamos optar por essa segunda forma.

P	Q	R	P v Q	Q v R	P v (Q v R)	(P v Q) → (P v (Q v R))
V	V	V	V	V	V	V
V	V	F	V	V	V	V
V	F	V	V	V	V	V
V	F	F	V	F	V	V
F	V	V	V	V	V	V
F	V	F	V	V	V	V
F	F	V	F	V	V	V
F	F	F	F	F	F	V

Portanto, na última coluna da tabela-verdade apresentada temos **8 valores verdadeiros**. O item está **CERTO**.

Situação hipotética: Uma pesquisa foi realizada pela Secretaria de Saúde Estadual com o objetivo de verificar as doenças respiratórias (Covid, Influenza, Gripe) que 1321 entrevistados tiveram nos últimos dois anos. Como resposta, foi verificado que, dos entrevistados:

- 706 afirmaram que tiveram Covid;
- 383 afirmaram que tiverem Influenza;
- 759 afirmaram que tiveram Gripe;
- 213 afirmaram que tiveram Covid e Influenza;
- 160 afirmaram que tiveram Influenza e Gripe;
- 277 afirmaram que tiveram Covid e Gripe;
- 96 afirmaram que tiveram Covid, Influenza e Gripe;

Cumpre destacar ainda que uma determinada quantidade de entrevistados afirmou que não tiveram nenhuma das doenças apresentadas no período analisado.

Com base na situação hipotética apresentada, julgue os itens **55 a 57** a seguir.

55. A quantidade de entrevistados que afirmaram que tiveram somente Covid é superior ao triplo da quantidade de entrevistados que afirmaram que tiveram somente Influenza.

Gabarito: Errado

Comentário: Podemos ir analisando de baixo para cima as informações apresentadas:

1° - 96 afirmaram que tiveram Covid, Influenza e Gripe;

Nesse caso, verificamos que (C ∩ I ∩ G) = **96**

2° - 277 afirmaram que tiveram Covid e Gripe;

Para determinarmos os entrevistados que tiveram somente Covid e Gripe teremos:

- Somente Covid e gripe = (C ∩ G) - (C ∩ I ∩ G)
- Somente Covid e gripe = 277 – 96 = **181**

3° - 160 afirmaram que tiveram Influenza e Gripe;

Para determinarmos os entrevistados que tiveram somente Influenza e Gripe teremos:

- Somente Influenza e gripe = (I ∩ G) - (C ∩ I ∩ G)

98276239072 - FABIANO CARBONELL DA SILVA

- Somente Influenza e gripe = 160 – 96 = **64**

4° - 213 afirmaram que tiveram Covid e Influenza;

Para determinarmos os entrevistados que tiveram somente Covid e Influenza teremos:

- Somente Covid e influenza = (C ∩ I) - (C ∩ I ∩ G)
- Somente Covid e influenza = 213 – 96 = **117**

Agora, podemos calcular os valores dos entrevistados que tiveram somente Covid ou somente Influenza ou somente Gripe.

5° - 759 afirmaram que tiveram Gripe;

Para determinar o quantitativo de entrevistados que tiveram somente

- Somente Gripe = 759 – (181 + 64 + 96)
- Somente Gripe = **418**

6° - 383 afirmaram que tiverem Influenza;

Para determinar o quantitativo de entrevistados que tiveram somente

- Somente Influenza = 383 – (64 + 117 + 96)
- Somente Influenza = **106**

7° - 706 afirmaram que tiveram Covid;

Para determinar o quantitativo de entrevistados que tiveram somente

- Somente Covid = 706 – (181 + 117 + 96)
- Somente Covid = **312**

Calculando a razão entre o número de pessoas que afirmaram ter somente Covid e o número de pessoas que afirmaram ter somente Influenza:

$$r = \frac{312}{106} \approx 2,94$$

Portanto, o item está **ERRADO**, pois a proporção é **inferior** ao triplo.

56. Pelo menos 27 entrevistados afirmaram que não tiveram nenhuma das doenças no período analisado.

Gabarito: Certo

Comentário: Com as informações da questão anterior, podemos montar os diagramas a seguir:

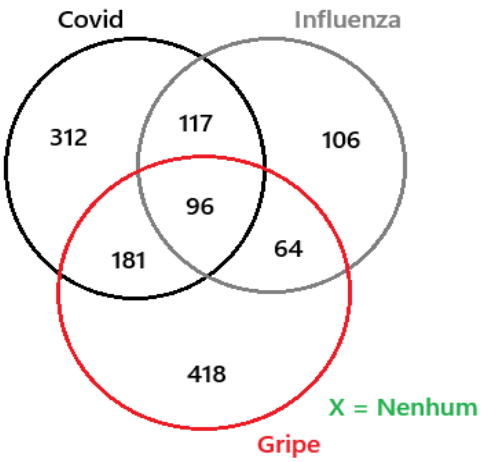

Como foram entrevistadas 1321 pessoas, conseguimos determinar a quantidade de pessoas que não tiveram nenhuma das doenças apresentadas:

- 1321 = 312 + 117 + 106 + 96 + 181 + 64 + 418 + X
- 1321 = 1294 + X
- X = 27 pessoas.

Portanto, o item está **CERTO**.

57. Ao selecionarmos aleatoriamente uma pessoa dentre as pessoas que afirmaram que tiveram influenza, a probabilidade de ela ter afirmado que também teve ou Covid ou Gripe, mas não ambos, é superior a 50%.

Gabarito: Errado

Comentário: A questão pede os seguintes valores, em relação ao total de pessoas com Influenza (383):

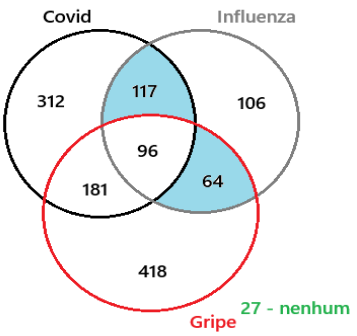

98276239072 - FABIANO CARBONELL DA SILVA

Dessa forma, teremos a seguinte probabilidade:

$$P = \frac{117+64}{383} \approx 47\%$$

Portanto, o item está **ERRADO**, pois é inferior a 50%.

Situação hipotética: Em um restaurante, em relação às proteínas, há 4 pedaços de carne e 6 pedaços de peixe. Pedro irá almoçar nesse restaurante e irá escolher 4 pedaços de proteína, sendo que ele deve escolher ao menos um pedaço de cada tipo de proteína (carne ou peixe).

Com base na situação hipotética apresentada, julgue os **itens 58 e 59** a seguir.

58. O número de maneiras distintas possíveis de Pedro fazer essa escolha é inferior a 200.

Gabarito: Certo

Comentário: Como ele irá selecionar 4 pedaços dentre os 4 de carne disponíveis e os 6 de peixe disponíveis, sendo que ele precisa escolher pelo menos um pedaço de cada tipo, temos as seguintes possibilidades:

- 1 Carne + 3 Peixe;
- 2 Carne + 2 Peixe;
- 3 Carne + 1 Peixe.

Vamos calcular as combinações para cada caso:

1° - 1 carne + 3 peixe

Nesse caso, temos as seguintes combinações possíveis:

$$C1 = \frac{4!}{(4-1)!x\,1!}\,x\,\frac{6!}{(6-3)!x\,3!}$$

$$C1 = 4\,x\,20 = 80$$

2° - 2 carne + 2 peixe

Nesse caso, temos as seguintes combinações possíveis:

$$C2 = \frac{4!}{(4-2)!x\,2!}\,x\,\frac{6!}{(6-2)!x\,2!}$$

$$C2 = 6\,x\,15 = 90$$

3° - 3 carne + 1 peixe

Nesse caso, temos as seguintes combinações possíveis:

$$C3 = \frac{4!}{(4-3)!x\,3!}\,x\,\frac{6!}{(6-1)!x\,1!}$$

$$C3 = 4\,x\,6 = 24$$

Somando as maneiras apresentadas, teremos:

- Ct = C1 + C2 + C3
- Ct = 80 + 90 + 24
- **Ct = 194 maneiras distintas.**

Portanto, o item está **CERTO**, pois o valor é inferior a 200.

59. A probabilidade de Pedro escolher 2 pedaços de carne e 2 pedaços de peixe, respeitando a restrição de que ele deve escolher pelo menos um pedaço de cada tipo de proteína, é inferior a 45%.

Gabarito: Errado

Comentário: Conforme vimos, temos 90 maneiras de selecionar 2 carnes e 2 peixes dentre as 194 apresentadas, logo, a probabilidade será:

$$P = \frac{90}{194} \approx 0,46\ ou\ 46\%$$

Dessa forma, o item está **ERRADO**.

Situação hipotética: Em uma urna fechada há 3 bolinhas azuis, 2 bolinhas brancas e 5 bolinhas verdes.

Julgue o item seguinte.

60. É necessário retirar 6 bolinhas dessa urna para garantir que pelo menos duas delas são verdes.

Gabarito: Errado

Comentário: Como temos 10 bolinhas ao total, sendo 5 de cores diferentes da verde, precisamos retirar, no mínimo, 7 bolinhas da urna para termos a garantia de que pelo menos duas delas são verdes.

Dessa forma, o item está **ERRADO**.

98276239072 - FABIANO CARBONELL DA SILVA

-- BLOCO II --

INFORMÁTICA

No que se refere a redes de computadores, julgue os itens que se seguem.

61. Programas como BitTorrent e aplicativos VoIP *(Voz sobre IP)* utilizam predominantemente o modelo de rede cliente/servidor, em que as máquinas se comunicam diretamente entre si.

Gabarito: Errado

Comentário: na verdade, programas como BitTorrent e aplicativos VoIP utilizam predominantemente o modelo *peer-to-peer* (P2P), e não o modelo cliente/servidor. Na arquitetura de rede *P2P,* as máquinas se comunicam diretamente entre si, sem a existência de um servidor central para o compartilhamento de serviços e recursos na rede. Assim, os programas citados utilizam, principalmente, um modelo *peer-to-peer* (P2P), embora alguns serviços VoIP possam empregar uma abordagem híbrida.

62. Existe um ponto único de falha na topologia física em malha (*mesh)*. Assim, se o dispositivo central falhar, toda a rede será prejudicada.

Gabarito: Errado

Comentário: a assertiva descreveu uma característica da topologia física em estrela (*star).* Em contrapartida, na topologia *mesh,* cada estação de trabalho possui uma conexão ponto-a-ponto direta e dedicada com as demais estações da rede, de modo que uma única falha - em qualquer que seja o ponto (nó) - resulta em uma interferência mínima na comunicação.

63. O cabo coaxial é um meio de transmissão do tipo guiado que, em geral, cobre distâncias maiores e apresenta uma taxa de transmissão menor quando comparado ao cabo de par trançado.

Gabarito: Certo

Comentário: os cabos coaxial e de par trançado são exemplos de meios de transmissão do tipo guiado, em que os dados transmitidos são convertidos em sinais elétricos que se propagam pelo material condutor. Além disso, o cabo coaxial geralmente cobre distâncias maiores, mas apresenta uma taxa de transmissão menor quando comparado ao cabo de par trançado.

64. O switch e o roteador desempenham funções idênticas dentro de uma rede, pois ambos são responsáveis por encaminhar pacotes com base nos endereços IP.

Gabarito: Errado

Comentário: o switch opera na camada de enlace do modelo OSI e encaminha pacotes com base nos endereços MAC. Já o roteador atua na camada de rede e encaminha pacotes com base nos endereços IP, permitindo a comunicação entre redes distintas.

65. Os roteadores utilizam tabelas de roteamento para determinar o melhor caminho para o envio de pacotes, podendo empregar protocolos como RIP e OSPF para essa finalidade.

Gabarito: Certo

Comentário: os roteadores fazem uso de tabelas de roteamento para decidir a melhor rota para a entrega de pacotes de dados. Protocolos como RIP *(Routing Information Protocol)* e OSPF (*Open Shortest Path First*) podem ser utilizados para essa tarefa.

66. A tecnologia *Gigabit Ethernet* suporta uma taxa de transmissão de até 1 Gbps, sendo uma evolução do padrão *Fast Ethernet*.

Gabarito: Certo

Comentário: com base na evolução dos padrões *Ethernet,* temos:

98276239072 - FABIANO CARBONELL DA SILVA

(Padrão – Taxa máxima de transmissão):

Ethernet – 10 Mbps;

Fast Ethernet – 100 Mbps;

Gigabit Ethernet – 1 Gbps;

10G Ethernet – 10 Gbps.

67. O protocolo IPv6 utiliza endereços de 32 bits, permitindo um número muito maior de dispositivos conectados à Internet em comparação ao IPv4.

Gabarito: Errado

Comentário: na verdade, o IPv4 utiliza endereços de 32 bits, enquanto o IPv6 utiliza endereços de 128 bits, o que amplia significativamente a quantidade de endereços disponíveis para identificação de dispositivos na Internet.

Com base nos conceitos de *cloud computing*, julgue os itens subsequentes:

68. O Google Drive, que permite o armazenamento e o compartilhamento de arquivos na nuvem, é um exemplo de serviço no modelo IaaS *(Infrastructure as a Service),* pois fornece infraestrutura computacional para os usuários.

Gabarito: Errado

Comentário: o Google Drive é um exemplo de SaaS *(Software as a Service)*, pois oferece um serviço pronto para o usuário final, sem a necessidade de gerenciamento da infraestrutura. O modelo IaaS fornece recursos como servidores e armazenamento bruto, mas não inclui aplicações prontas como o Google Drive.

69. Uma nuvem híbrida combina elementos de nuvens públicas e privadas, permitindo maior flexibilidade e um controle mais estratégico sobre os recursos de TI.

Gabarito: Certo

Comentário: a nuvem híbrida combina nuvem pública (infraestrutura compartilhada por vários clientes) e nuvem privada (infraestrutura dedicada a uma única organização), permitindo que as empresas escolham onde armazenar dados e executar aplicações conforme as suas necessidades de segurança e desempenho.

A respeito de Internet e de navegadores web, julgue os itens a seguir.

70. Na Internet, pode-se utilizar uma VPN (*Virtual Private Network)* para o envio de informações com mais privacidade e confidencialidade. Essa técnica utiliza um processo de tunelamento para a proteção das informações trafegadas.

Gabarito: Certo

Comentário: uma VPN (*Virtual Private Network)* é uma tecnologia de acesso que permite a utilização da infraestrutura da Internet para a transmissão de informações de maneira segura. Ademais, a VPN cria uma espécie de túnel que protege a confidencialidade das informações – encapsulamento de um protocolo dentro de outro.

71. O modo de navegação anônima do Google Chrome impede que os provedores de Internet monitorem os sites visitados pelo usuário.

Gabarito: Errado

Comentário: a navegação anônima apenas impede que o navegador salve histórico, cookies e dados temporários localmente. No entanto, provedores de Internet, administradores de rede e sites ainda podem monitorar a navegação do usuário.

Com base nas metodologias de desenvolvimento de sistemas, analise os itens a seguir.

72. De acordo com Ian Sommerville, são fases de um projeto de software no modelo de desenvolvimento em cascata: análise e definição de requisitos; projeto de sistema e software; implementação e teste de unidade; integração e teste de sistema; operação e manutenção.

Gabarito: Certo

98276239072 - FABIANO CARBONELL DA SILVA

Comentário:

as fases do modelo de desenvolvimento em cascata variam a depender do autor. Segundo Ian Sommerville, um dos autores mais consagrados da área de engenharia de software, temos as seguintes fases: *análise e definição de requisitos; projeto de sistema e software; implementação e teste de unidade; integração e teste de sistema; operação e manutenção.*

73. O modelo em espiral proposto por Boehm combina atividades de desenvolvimento com aspectos gerenciais, como planejamento, tomada de decisão e análise de riscos.

Gabarito: Certo

Comentário: o modelo em espiral proposto por Boehm representa um processo de software orientado a riscos. Em vez de representar o processo como uma sequência de atividades, o processo é representado como uma espiral, combinando atividades de desenvolvimento com aspectos gerenciais (planejamento, tomada de decisão, análise de riscos, etc). Além disso, este modelo é também conhecido como prototipagem-em-etapas, por combinar o modelo em cascata com a prototipação.

Com relação a sistemas operacionais, julgue os itens que se seguem.

74. No Windows 10, o atalho de teclado *Winkey + D* minimiza todas as janelas abertas e exibe a Área de Trabalho.

Gabarito: Certo

Comentário: a combinação de teclas *Winkey + D* minimiza todas as janelas abertas, permitindo o acesso rápido à Área de Trabalho. Pressionando novamente, as janelas são restauradas ao seu estado original.

75. No Linux, o comando *mv* pode ser utilizado para mover ou renomear arquivos e diretórios.

Gabarito: Certo

Comentário: o comando mv (**mov**e) tem a função de mover arquivos e diretórios - de um local para outro - ou renomeá-los. Sua sintaxe básica é: *mv [origem] [destino]*. Se o destino for um diretório, o arquivo será movido; se for um novo nome, o arquivo será renomeado.

Acerca dos programas de edição de textos, planilhas e apresentações, julgue os itens a seguir.

Para os próximos 2 itens, considere a planilha a seguir, recortada do MS-Excel 2019.

	A	B	C
1	1	1	2
2	3		5
3	8	13	-

76. Ao digitar a fórmula *=CONT.NÚM(A1:C3)* na célula D1, será retornado como resultado o valor 33.

Gabarito: Errado

Comentário: a função CONT.NÚM calcula o número de células em um intervalo que contém números. Desse modo, a fórmula *=CONT.NÚM(A1:C3)* retornará à quantidade de células preenchidas com valores numéricos no intervalo de A1 a C3, ou seja, o valor 7.

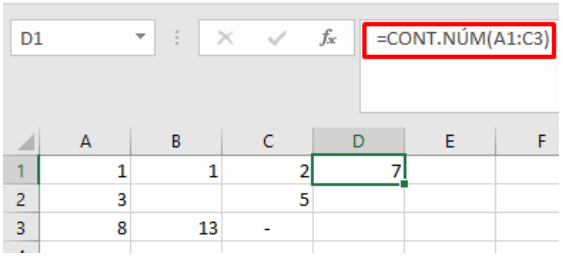

77. Ao digitar a fórmula *=CONT.VALORES(A1:C3)* na célula F5, será retornado como resultado o valor 7.

Gabarito: Errado

Comentário: a função =CONT.VALORES(*intervalo*) calcula o número de células em um intervalo que não estão vazias. Assim, no intervalo entre A1 e

C3, 8 células contêm pelo menos um caractere. Portanto, o valor retornado será 8.

78. No MS-Word 2019, o recurso "Controlar Alterações" pode ser ativado na guia "Exibir".

Gabarito: Errado

Comentário: na verdade, o recurso "Controlar Alterações" está na guia "Revisão", e não em "Exibir". Esse recurso permite controlar todas as edições feitas no documento, destacando inclusões, exclusões e formatações realizadas.

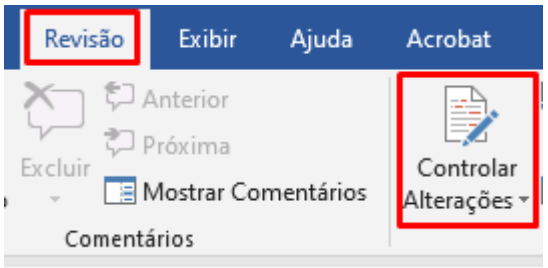

79. No MS-PowerPoint 2019, o recurso "Transições" permite definir efeitos visuais entre os slides de uma apresentação.

Gabarito: Certo

Comentário: no MS-PowerPoint 2019, a guia "Transições" oferece diversos efeitos visuais para a troca de slides durante uma apresentação. O usuário pode ajustar a duração, adicionar som e personalizar o estilo da transição para melhorar o impacto visual.

Com base nos conceitos de *data mining*, analise o item a seguir.

80. O suporte ou prevalência de uma regra de associação trata da probabilidade de que exista uma relação entre itens.

Gabarito: Errado

Comentário: em *data mining,* existem duas medidas de qualidade de uma regra de associação:

- ***Suporte/prevalência:*** *trata da* ***frequência*** *com que um conjunto de itens ocorrem no banco de dados;*
- *Confiança/força: trata da probabilidade de que exista uma relação entre itens (ex: alta probabilidade de X ser comprado, dado que Y foi comprado).*

Portanto, a assertiva inverteu os conceitos mencionados.

Com relação a conceitos de programação R e Python, julgue os itens que se seguem.

81. Na linguagem R, a função *ncol(X)* retorna o número de colunas da matriz X.

Gabarito: Certo

Comentário: de fato, a função *ncol(X)* retorna o número de colunas da matriz X, ao passo que a função *nrow(X)* retorna o número de linhas dessa matriz.

82. Em Python, o operador == é utilizado para atribuir um valor a uma variável.

Gabarito: Errado

Comentário: na verdade, o operador == tem a função de comparar dois valores e verificar se são iguais, retornando *True* ou *False*. Para atribuir um valor a uma variável, utiliza-se o operador *=.*

83. O código Python a seguir apresenta como resultado o valor 15.

```
a = "5"
b = 10
c = int(a)
print(a+b)
```

Gabarito: Errado

Comentário: a linguagem Python é de tipagem forte, isto é, não converte automaticamente tipos incompatíveis de variáveis em operações matemáticas. No código apresentado, a variável **'a'** é uma *string* ("5"), enquanto **'b'** é um número inteiro (10). O operador + entre tipos incompatíveis de variáveis gera um erro de tipo (***TypeError***), que será apresentado como resultado

98276239072 - FABIANO CARBONELL DA SILVA

do código apresentado. Para corrigir e obter o resultado 15, a variável 'a' deveria ser convertida para inteiro - *int(a)* - antes da realização da soma: *print(int(a)+b).*

Com base na arquitetura TCP/IP, julgue os itens a seguir.

84. O protocolo ICMP *(Internet Control Message Protocol)* é utilizado para enviar mensagens de erro e diagnóstico na rede, sendo o comando "ping" um exemplo de uso desse protocolo.

Gabarito: Certo

Comentário: o ICMP opera na camada de rede e é utilizado por dispositivos de rede, como roteadores e hosts, para comunicar informações de controle e erros. Além disso, é usado para testes de conectividade, como no caso do comando "*ping*", que verifica a acessibilidade de um host na rede e mede o tempo de resposta.

85. O NAT *(Network Address Translation)* é o recurso que permite que um usuário tenha em sua rede interna uma grande quantidade de endereços privados e, externamente, apenas um endereço público.

Gabarito: Certo

Comentário: o NAT tem a função de "traduzir" endereços IP de uma rede para a outra, permitindo que endereços privados se comuniquem na Internet. Com o esgotamento/falta de endereços IPv4, o NAT surgiu com a função destacada na assertiva, qual seja a de permitir que um usuário tenha em sua rede privada uma grande quantidade de endereços privados (para conectar celular, TV, notebook etc) e, externamente, apenas um endereço público (IP público).

Com referência a conceitos de proteção e de segurança da informação, julgue os itens a seguir.

86. O princípio da confidencialidade busca garantir que a informação recebida esteja correta, fidedigna e não corrompida.

Gabarito: Errado

Comentário: na verdade, é o princípio da integridade que busca garantir que a informação recebida é a mesma enviada, de forma que esteja correta, fidedigna e não corrompida. A confidencialidade, por sua vez, está relacionada ao controle de acesso da informação, para que esta não seja disponibilizada a pessoas não autorizadas.

87. O *ransomware* é um tipo de malware que se disfarça como um programa legítimo para enganar o usuário e executar ações maliciosas em segundo plano.

Gabarito: Errado

Comentário: o *trojan horse* é o malware com as características descritas na assertiva. Já o *ransomware* é um tipo de malware que, uma vez instalado no sistema, criptografa os arquivos do usuário e exige um pagamento (resgate) para descriptografá-los. Assim, o foco do *ransomware* está no bloqueio de dados, não no disfarce como um programa legítimo.

88. O AES *(Advanced Encryption Standard)* é um algoritmo simétrico de chave privada. Outrossim, as chaves do AES podem ter até 256 bits.

Gabarito: Certo

Comentário: de fato, o AES é um algoritmo simétrico de chave privada, ou seja, utiliza a mesma chave para criptografar e descriptografar os dados. Além disso, suas chaves podem ter tamanhos de 128, 192 ou 256 bits.

Considerando a teoria geral de sistemas e a teoria da informação, julgue os itens a seguir:

89. Um sistema fechado não troca informações ou energia com o ambiente externo.

Gabarito: Certo

98276239072 - FABIANO CARBONELL DA SILVA

Comentário: na teoria geral de sistemas, um sistema fechado é aquele que não interage com o ambiente externo, ou seja, não troca informações nem energia com o meio externo. Esse tipo de sistema é isolado, em contraste com um sistema aberto, que troca dados e recursos com o ambiente, mantendo um fluxo contínuo de informações e energia.

90. O conhecimento tácito é subjetivo, experimental, difícil de capturar e muitas vezes proveniente de experiências vivenciadas.

Gabarito: Certo

Comentário: em síntese, um conhecimento é gerado com a aplicação da informação, podendo ser tácito ou explícito. O conhecimento tácito é subjetivo, cognitivo, experimental; difícil de capturar ou documentar; proveniente de experiências; pessoal e internalizado. Já o conhecimento explícito é objetivo, racional, técnico, estruturado; proveniente da racionalidade; fácil de documentar e externalizar.

Com base nos conceitos de *Business Intelligence (BI)*, analise o item a seguir.

91. *Business Intelligence* é utilizado para transformar dados brutos em informações estratégicas que podem orientar decisões empresariais.

Gabarito: Certo

Comentário: Business Intelligence (BI) envolve o uso de ferramentas, processos e tecnologias para coletar, organizar, analisar e transformar dados brutos em informações estruturadas, que podem auxiliar na tomada de decisões estratégicas.

Julgue os itens a seguir referentes a bancos de dados.

92. Um projeto de banco de dados pode ser dividido em três níveis de abstração, sendo o nível físico aquele que oferece os conceitos que são mais próximos ao modo como os usuários compreendem os dados.

Gabarito: Errado

Comentário: um projeto de banco de dados pode ser dividido em três níveis de abstração, conhecidos como modelo conceitual, modelo lógico e modelo físico. O modelo conceitual trata dos conceitos de mais alto nível, buscando envolver o cliente e discutir os aspectos gerais do negócio. Assim, este é o nível que oferece os conceitos que são mais próximos do usuário. O nível ou modelo físico, por sua vez, descreve como os dados são efetivamente armazenados no sistema, incluindo o uso de arquivos, índices e outros recursos de armazenamento físico.

93. Com base nas regras de Codd, a regra da independência lógica de dados afirma que as alterações nas estruturas lógicas dos dados não devem afetar as aplicações que utilizam o banco de dados.

Gabarito: Certo

Comentário: a assertiva descreveu corretamente a regra número 04 de Codd, que trata da independência lógica de dados. Essa regra estabelece que alterações nas estruturas lógicas dos dados, como a adição de tabelas ou alterações de atributos, não devem afetar as aplicações que acessam os dados. As mudanças na estrutura interna dos dados devem ser feitas de forma que não impactem o uso de dados pelas aplicações.

94. A normalização, no modelo de banco de dados relacional, refere-se ao processo de organizar os dados para minimizar redundâncias e dependências.

Gabarito: Certo

Comentário: a normalização é o processo de organizar as tabelas de um banco de dados de maneira que as redundâncias e dependências desnecessárias sejam minimizadas. O objetivo da normalização é melhorar a eficiência do banco de

98276239072 - FABIANO CARBONELL DA SILVA

dados, facilitando a manutenção e garantindo a integridade dos dados.

95. No modelo relacional de um banco de dados, uma tabela pode ter múltiplas chaves primárias.

Gabarito: Errado

Comentário: no modelo relacional, uma tabela só pode ter uma chave primária. A chave primária é um conjunto de atributos que identifica de forma única cada linha em uma tabela. Embora uma tabela possa ter várias chaves candidatas, apenas uma delas é escolhida como chave primária. As demais chaves candidatas podem ser utilizadas como chaves alternativas.

Com relação à linguagem SQL (Structured Query Language), julgue o item subsequente.

96. O comando TRUNCATE é utilizado para remover todos os dados de uma tabela em um banco de dados, sem apagar a estrutura desta tabela.

Gabarito: Certo

Comentário: de fato, o comando "TRUNCATE" tem a função de remover somente os dados de uma tabela, não apagando a tabela em si. Assim, a tabela ainda existe após o uso deste comando, com suas colunas e restrições preservadas, mas os dados são excluídos.

98276239072 - FABIANO CARBONELL DA SILVA

-- BLOCO III --

CONTABILIDADE GERAL

Em relação aos fatos contábeis, julgue o item subsequente.

97. A constituição de provisão para perdas esperadas associadas ao risco de insolvência dos clientes em vendas a prazo é um fato contábil de natureza modificativa.

Gabarito: Certo

Comentário: Exatamente! Um fato contábil modificativo ocorre quando há alteração no patrimônio líquido. Assim, quando a empresa constitui a provisão para perdas esperadas com clientes, ocorre uma redução no ativo (contas a receber de clientes) e um aumento na despesa (despesa de provisão para perdas esperadas).

Desse modo, a constituição impacta negativamente o patrimônio líquido. Vejamos:

D – Perdas Esperadas com Clientes (Despesa)

C - Clientes (Ativo)

Considerando os conceitos, objetivos e finalidades da contabilidade, julgue os itens que se seguem.

98. Na teoria contábil atual, o objeto da contabilidade é o conjunto de bens e direitos de propriedade da entidade.

Gabarito: Errado

Comentário: Na verdade, o objeto de estudo da contabilidade é o **patrimônio**, que é formado por bens, direitos e **obrigações** da entidade. Assim, o enunciado da questão desconsiderou as obrigações, as quais fazem parte do patrimônio.

99. O objetivo da contabilidade é fornecer todas as informações úteis e específicas para a tomada de decisão de cada usuário da informação contábil

Gabarito: Errado

Comentário:

O objetivo da contabilidade é, de fato, fornecer informações úteis e relevantes para a tomada de decisões. Porém, não se destina a atender **todas** as exigências específicas de cada usuário da informação contábil.

Os usuários da informação contábil utilizam as informações contábeis para tomar suas próprias decisões. Assim, a contabilidade não fornece todas as informações que os usuários da contabilidade necessitam, visto que a contabilidade não pode personalizar seus relatórios para cada usuário de forma específica.

100. Em uma entidade, quando o total de passivos se iguala ao total de ativos, ocorre o denominado passivo a descoberto.

Gabarito: Errado

Comentário: Na verdade, o passivo a descoberto ocorre quando o passivo é maior que o ativo, resultando em um patrimônio líquido negativo. Ou seja, se o ativo for igual ao passivo, o patrimônio líquido é **zero**. Portanto, não ocorrerá um passivo a descoberto.

Assim:

- Ativo = Passivo ⇒ Patrimônio líquido igual a zero (situação líquida nula)
- Ativo > Passivo ⇒ Patrimônio líquido maior que zero (situação líquida positiva)
- Ativo < Passivo ⇒ Patrimônio líquido menor que zero (situação líquida negativa = **passivo a descoberto**)

101. A situação patrimonial e financeira de uma entidade em determinado momento é demonstrado pelo balanço patrimonial.

Gabarito: Certo

Comentário: O balanço patrimonial evidencia a posição patrimonial e financeira da entidade em determinado momento, pois é uma demonstração

98276239072 - FABIANO CARBONELL DA SILVA

estática que apresenta a posição dos **ativos, passivos e patrimônio líquido da entidade em uma data específica**.

Uma empresa com fins lucrativos contratou, no dia 1º do último mês findo, um novo funcionário, com salário de R$ 15.000, mais encargos legais, a ser pago no 5º dia útil após o mês de prestação dos serviços.

Com relação à situação hipotética anterior, julgue os itens seguintes.

102. A contratação do novo funcionário é um ato administrativo que impacta negativamente o patrimônio líquido da entidade.

Gabarito: Errado

Comentário: Na verdade, a contratação de um funcionário para a empresa é um **ato administrativo**, e não um fato contábil. Desse modo, não causa impacto no patrimônio líquido da entidade. Assim, apenas quando houver o reconhecimento da despesa com o funcionário, haverá impacto no patrimônio líquido.

Portanto, a contratação é um ato administrativo que **não** impacta negativamente o patrimônio líquido da entidade.

103. O reconhecimento da despesa com o salário e os encargos do novo funcionário deve impactar o balancete do mês da prestação dos serviços.

Gabarito: Certo

Comentário: De acordo com o **regime de competência**, a despesa é reconhecida no mês em que ocorre a prestação do serviço, independentemente do pagamento. Assim, o lançamento do reconhecimento da despesa de salário com o funcionário na prestação do serviço é:

D – Salários (despesa)

C – Salários a pagar (passivo)

104. O pagamento do salário e dos encargos do novo funcionário é um fato contábil permutativo, com saída de recursos do ativo e baixa de passivos.

Gabarito: Certo

Comentário: Exatamente! O pagamento do salário não afeta o patrimônio líquido, pois ocorre uma permuta: redução no ativo (caixa ou bancos) e diminuição de um passivo (salários a pagar). Isso ocorre pois o pagamento é realizado no 5º dia útil após o mês da prestação do serviço. Desse modo, o reconhecimento da despesa já ocorreu no mês anterior.

Assim, o lançamento contábil permutativo seria:

D – Salários a pagar (passivo)

C – Caixa (ativo)

Com relação ao uso de plano de contas, julgue os itens seguintes.

105. As contas sintéticas agregam os valores do saldo dos grupos e subgrupos no plano de contas.

Gabarito: Certo

Comentário: Isso mesmo! As contas sintéticas são aquelas que **não possuem movimentação direta e servem para agrupar informações de contas analíticas**. Desse modo, elas permitem uma visão consolidada do plano de contas, o que facilita a análise financeira da entidade.

106. As contas de compensação podem ser consideradas contas analíticas e são utilizadas para registro de atos contábeis ou administrativos.

Gabarito: Certo

Comentário: As contas de compensação registram eventos que não afetam imediatamente o patrimônio da entidade, mas que são relevantes para o controle. Elas são contas extrapatrimoniais e podem ser analíticas ou sintéticas, visto que são utilizadas para registrar operações que não geram efeito no resultado.

98276239072 - FABIANO CARBONELL DA SILVA

Julgue os próximos itens, que versam sobre o balancete de verificação

107. De acordo com as normas contábeis, o balancete de verificação deve ser elaborado mensalmente.

Gabarito: Errado

Comentário: Na verdade, o balancete de verificação é um demonstrativo de caráter auxiliar. Portanto, não é obrigatório e não deve ser elaborado mensalmente, apesar de ser uma prática comum a elaboração para controle contábil. Desse modo, a elaboração do balancete pode ser feita em qualquer periodicidade da empresa.

108. O balancete de verificação é um resumo ordenado de todas as contas utilizadas pela contabilidade da entidade que o apresenta, destinando-se apenas a evidenciar a correta aplicação do método das partidas dobradas.

Gabarito: Certo

Comentário: Isso mesmo! O balancete de verificação é um instrumento que auxilia na conferência dos lançamentos contábeis, permitindo verificar a igualdade dos débitos e dos créditos para verificar se o método das partidas dobradas foi corretamente aplicado. Além disso, o balancete de verificação não possui o objetivo de encontrar outros erros de lançamentos, como, por exemplo, lançamentos invertidos.

Relativamente ao tratamento contábil de estoques, julgue os itens que se seguem.

109. Os estoques são mensurados pelo valor de custo ou valor de mercado, dos dois o menor.

Gabarito: Errado

Comentário: De acordo com o CPC 16, os estoques devem ser mensurados pelo **custo** ou pelo **valor realizável líquido**, dos dois o menor. Assim, o **valor realizável líquido** é o preço estimado de venda no curso normal dos negócios, menos os custos estimados para a conclusão e as despesas necessárias para a venda. Portanto, o "**valor de mercado**" não é um critério de mensuração para os estoques.

110. O montante total do custo do estoque deve incluir todos os custos de aquisição e de transformação, como: preço de compra, descontos comerciais, abatimentos, impostos de importação e outros tributos não recuperáveis bem como custos de transporte, seguro e outros diretamente atribuíveis à aquisição de produtos acabados, materiais e serviços.

Gabarito: Errado

Comentário: De acordo com o CPC 16, **descontos comerciais** e **abatimentos** não compõem o total do custo do estoque. Vejamos:

CPC 16

11. O custo de aquisição dos estoques compreende o preço de compra, os impostos de importação e outros tributos (exceto os recuperáveis junto ao fisco), bem como os custos de transporte, seguro, manuseio e outros diretamente atribuíveis à aquisição de produtos acabados, materiais e serviços. ***Descontos comerciais, abatimentos e outros itens semelhantes devem ser deduzidos na determinação do custo de aquisição.***

Assim, descontos comerciais e abatimentos são deduzidos do custo de aquisição dos estoques.

O custo de aquisição dos estoques compreende:

- Preço de compra
- Impostos de importação e outros tributos (exceto os recuperáveis).
- Custos de transporte, seguro, manuseio e outros diretamente atribuíveis à aquisição.

Não inclui:

- Tributos recuperáveis (Matéria Prima: IPI, ICMS, PIS, COFINS não cumulativos. Mercadoria para Revenda: ICMS, PIS, COFINS não cumulativos)
- **Descontos comerciais**
- **Abatimentos**

98276239072 - FABIANO CARBONELL DA SILVA

Em referência à mensuração e à avaliação de itens patrimoniais ativos, julgue os itens subsequentes.

111. O valor de um ativo imobilizado permanece inalterado após seu reconhecimento inicial, não estando sujeito a ajustes contábeis como depreciação ou provisão para perda de valor recuperável.

Gabarito: Errado

Comentário: Na verdade, o **CPC 27 – Ativo Imobilizado** determina que o valor de um ativo imobilizado deve ser ajustado ao longo do tempo por meio da depreciação, amortização ou exaustão. Além disso, se houver indicativo de **perda de valor recuperável**, deve-se realizar o teste de impairment, ajustando seu valor contábil.

112. O valor residual de um ativo é o valor estimado que a entidade obteria com a venda do ativo, após deduzir as despesas estimadas de venda, caso o ativo já tivesse a condição esperada para o fim de sua vida útil.

Gabarito: Certo

Comentário: Isso mesmo! De acordo com o CPC 27, o **valor residual** de um ativo representa a quantia líquida que a entidade espera obter com a venda do ativo ao final de sua vida útil, já descontados os custos de venda. Ademais, o valor residual é importante para calcular o valor depreciável do ativo.

Vejamos:

Valor depreciável = Valor contábil – **Valor residual**

Assim, o valor residual é o valor que a entidade espera vender o ativo ao final da sua vida útil.

Em fevereiro de 2025, a empresa Coruja assinou um contrato comprometendo-se a prestar determinado serviço a um cliente. No mês seguinte, atendendo a uma cláusula contratual, o cliente efetuou um adiantamento em dinheiro pelo serviço contratado. Em maio de 2025, o serviço foi finalmente prestado pela empresa Coruja ao cliente.

113. De acordo com o regime de competência, a receita de prestação de serviços deve ser reconhecida pela empresa Coruja em março.

Gabarito: Errado

Comentário: Conforme o regime de competência, as receitas são reconhecidas quando são incorridas, ou seja, quando o serviço é efetivamente prestado. Assim, a receita será reconhecida no mês de **maio**, pois o serviço foi devidamente prestado pela empresa Coruja.

114. Na contabilidade da empresa Coruja, o adiantamento realizado pelo cliente representa uma receita antecipada e é classificado como um lançamento de primeira fórmula da seguinte forma:

D – Receitas antecipadas

C – Obrigações com clientes

Gabarito: Errado

Comentário: O adiantamento realizado pelo cliente é uma receita antecipada da empresa. Porém, é gerado um passivo para a empresa por causa da receita antecipada. Assim, o lançamento correto seria:

D – Caixa (ativo)

C – Receitas antecipadas (passivo)

Ademais, o lançamento é, de fato, de primeira fórmula, pois utiliza apenas 1 débito e 1 crédito.

A respeito dos procedimentos estabelecidos pela legislação societária e pelo Comitê de Pronunciamentos Contábeis (CPc) em relação às demonstrações contábeis, julgue os itens a seguir.

115. Na demonstração do resultado do exercício de uma empresa comercial, o resultado operacional bruto representa a diferença entre a receita bruta das vendas e o somatório dos seguintes eventos: deduções das vendas, abatimentos, impostos,

98276239072 - FABIANO CARBONELL DA SILVA

descontos comerciais e custo da mercadoria vendida.

Gabarito: Certo

Comentário: Isso mesmo! O resultado operacional bruto é conhecido como **lucro bruto**. Ele é obtido subtraindo da **receita bruta** as deduções das vendas, abatimentos, impostos, descontos comerciais e custo da mercadoria vendida.

Vejamos:

Parte da estrutura da DRE:

- Faturamento bruto
  - (-) IPI sobre faturamento bruto
- = **Receita bruta**
  - (-) **devoluções e vendas canceladas**
  - (-) **abatimentos**
  - (-) **descontos comerciais (incondicionais)**
  - (-) **impostos**
- = **Receita Líquida**
  - **(-) Custo da mercadoria vendida (CMV**)
- = **Lucro Bruto (Resultado Bruto**)
  - (-) despesas operacionais
    - Despesas com vendas
    - Despesas gerais e administrativas
    - **Despesas financeiras (condicional)**
  - (+) Receitas operacionais
- = Lucro Líquido (Resultado líquido)

116. De acordo com a legislação societária, a evidenciação da receita bruta na demonstração do resultado do exercício é obrigatória.

Gabarito: Certo

Comentário: Isso mesmo! A Lei das SA (Lei nº 6.404/76) exige que a receita bruta seja evidenciada na demonstração do resultado do exercício.

Vejamos:

Parte da estrutura da DRE de acordo com a Lei das SA:

- Faturamento bruto
  - (-) IPI sobre faturamento bruto
- = **Receita bruta**
  - (-) devoluções e vendas canceladas
  - (-) abatimentos
  - (-) descontos comerciais (incondicionais)
  - (-) impostos
- = Receita Líquida
  - (-) Custo da mercadoria vendida (CMV)
- = Lucro Bruto (Resultado Bruto)
  - (-) despesas operacionais
    - Despesas com vendas
    - Despesas gerais e administrativas
    - Despesas financeiras (condicional)
  - (+) Receitas operacionais
- = Lucro Líquido (Resultado líquido)

Com base no Pronunciamento Técnico CPC 00 (R2) — Estrutura Conceitual para Relatório Financeiro, julgue os itens subsecutivos.

117. A materialidade é um aspecto de relevância específico da entidade com base na natureza ou magnitude, ou ambas, dos itens aos quais as informações se referem no contexto do relatório financeiro da entidade individual.

Gabarito: Certo

Comentário: De acordo com o CPC 00 (R2) – Estrutura conceitual para relatórios financeiros:

2.11 A informação é material se a sua omissão, distorção ou obscuridade puder influenciar, razoavelmente, as decisões que os principais usuários de relatórios financeiros para fins gerais tomam com base nesses relatórios, que fornecem informações financeiras sobre entidade específica que reporta. ***Em outras palavras, materialidade é um aspecto de relevância específico da entidade com base na natureza ou magnitude, ou ambas,***

98276239072 - FABIANO CARBONELL DA SILVA

dos itens aos quais as informações se referem no contexto do relatório financeiro da entidade individual. *Consequentemente, não se pode especificar um limite quantitativo uniforme para materialidade ou predeterminar o que pode ser material em uma situação específica*

Portanto, a materialidade é um aspecto de relevância específico da entidade, baseado na natureza ou na magnitude. Ou seja, o que é material para uma empresa pode não ser para outra. Não é possível determinar um valor ou um percentual uniforme para todas as empresas.

118. Receitas são aumentos nos ativos, ou reduções nos passivos, que resultam em redução no patrimônio líquido, exceto aqueles referentes a contribuições de detentores de direitos sobre o patrimônio.

Gabarito: Errado

Comentário: Na verdade, **receitas** são aumentos nos ativos, ou reduções nos passivos, que resultam em **aumentos** no patrimônio líquido, exceto aqueles referentes a contribuições de detentores de direitos sobre o patrimônio.

Ademais, cabe destacar que despesas são reduções nos ativos, ou aumentos nos passivos, que resultam em reduções no patrimônio líquido, exceto aqueles referentes a distribuições aos detentores de direitos sobre o patrimônio.

119. A relevância e a representação fidedigna são características qualitativas de melhoria da informação contábil.

Gabarito: Errado

Comentário: Na verdade, a relevância e a representação fidedigna são características qualitativas **fundamentais** da informação contábil.

As características qualitativas de **melhoria** são: comparabilidade, capacidade de verificação, tempestividade e compreensibilidade.

Com relação aos componentes do patrimônio líquido, julgue o item subsequente.

120. De acordo com a legislação societária, o ágio recebido em decorrência de emissão de ações aumenta a reserva de capital e, consequentemente, o patrimônio líquido da companhia

Gabarito: Certo

Comentário: Exatamente! O ágio na emissão de ações é contabilizado na **reserva de capital**, o que causa aumento no patrimônio líquido da entidade.

O ágio na emissão de ações é o valor da contribuição do subscritor (quem está comprando a ação) que ultrapassar o valor nominal das ações por ele adquiridas.

Ademais, cabe destacar que as **reservas de capital** são valores recebidos pela empresa (dos sócios ou de terceiros) que não se configuram como receita, isto é, não transitam pelo resultado do exercício, sendo contabilizadas diretamente à conta de Patrimônio Líquido.

São Reserva de Capital:

- **Ágio na emissão de ações**
- Produto da alienação de partes beneficiárias
- Produto da alienação de bônus de subscrição.

98276239072 - FABIANO CARBONELL DA SILVA

98276239072 - FABIANO CARBONELL DA SILVA

-- DISCURSIVA --

A Polícia Federal (PF) desempenha um papel estratégico na repressão aos crimes financeiros no Brasil, atuando na investigação de fraudes, lavagem de dinheiro e desvios de recursos públicos. Essas infrações impactam diretamente a economia nacional, comprometendo a arrecadação tributária, fomentando a corrupção e desestabilizando o sistema financeiro. No entanto, o combate a essas práticas envolve desafios como a utilização de criptomoedas em operações ilícitas, a dificuldade de rastreamento de fluxos financeiros e a necessidade de cooperação internacional para repatriação de ativos desviados.

A ATUAÇÃO DA POLÍCIA FEDERAL NO COMBATE AOS CRIMES FINANCEIROS E A PROTEÇÃO DO SISTEMA ECONÔMICO

- A relação entre crimes financeiros e corrupção no Brasil e os impactos dessa prática na administração pública. [valor: 3,50 pontos]
- As dificuldades da Polícia Federal na fiscalização de transações financeiras ilícitas e os desafios no controle do uso de criptomoedas. [valor: 4,50 pontos]
- O papel das operações policiais de grande repercussão na desarticulação de esquemas financeiros ilícitos e seus efeitos na sociedade. [valor: 4,50 pontos]

98276239072 - FABIANO CARBONELL DA SILVA

Proposta de Solução

A Polícia Federal (PF) exerce um papel estratégico na repressão aos crimes financeiros no Brasil, investigando fraudes, lavagem de dinheiro e desvios de recursos públicos. Essas infrações impactam diretamente a economia, comprometendo a arrecadação tributária e desestabilizando o sistema financeiro. O combate a esses delitos envolve desafios como a identificação de fluxos ilícitos, a regulação do uso de criptomoedas e a necessidade de cooperação internacional para rastreamento e repatriação de ativos desviados. Nesse contexto, as ações da PF são fundamentais para coibir práticas ilícitas e garantir maior transparência nas transações econômicas.

Inicialmente, destaca-se a relação entre crimes financeiros e corrupção no Brasil e seus impactos na administração pública. A apropriação indevida de recursos públicos por meio de esquemas de desvio e superfaturamento compromete a execução de políticas essenciais e amplia desigualdades sociais. A Operação Lava Jato revelou um dos maiores esquemas de corrupção do país, evidenciando a necessidade de mecanismos mais eficazes de controle e fiscalização. Além disso, crimes como sonegação fiscal e evasão de divisas reduzem significativamente a capacidade do Estado de financiar serviços essenciais, tornando a repressão a essas práticas uma prioridade para a PF e demais órgãos de controle.

Ademais, a fiscalização de transações financeiras ilícitas apresenta desafios significativos, especialmente diante do avanço da tecnologia e da popularização das criptomoedas. A descentralização e o anonimato proporcionados por ativos digitais dificultam o rastreamento de operações suspeitas, permitindo a movimentação de grandes quantias sem a devida supervisão estatal. Diante desse cenário, a PF tem investido no aprimoramento da inteligência financeira e na integração de sistemas de monitoramento para identificar padrões atípicos. O fortalecimento da atuação do Coaf e a implementação de protocolos mais rigorosos para o controle de transações eletrônicas são medidas que auxiliam na identificação e combate a essas práticas ilícitas.

Por fim, as operações policiais de grande repercussão desempenham papel central na desarticulação de esquemas financeiros ilícitos e na conscientização da sociedade sobre os impactos desses crimes. Investigações como a Operação Greenfield, que apurou fraudes em fundos de pensão, e a Operação Zelotes, que revelou irregularidades no Conselho Administrativo de Recursos Fiscais (Carf), demonstram a relevância da atuação da PF nesse contexto. Além de possibilitarem a recuperação de valores desviados, essas ações reforçam a necessidade de transparência e controle nos setores público e privado. A divulgação desses casos também contribui para fortalecer a cultura de integridade e incentivar a adoção de práticas mais rigorosas de compliance nas empresas.

98276239072 - FABIANO CARBONELL DA SILVA

Não é assinante?

Confira nossos planos, tenha acesso a milhares de cursos e participe gratuitamente dos projetos exclusivos. Clique no link!

http://estrategi.ac/assinaturas

Conheça nosso sistema de questões

Estratégia Questões nasceu maior do que todos os concorrentes, com mais questões cadastradas e mais soluções por professores. Clique no link e conheça!

http://estrategi.ac/ok1zt0

ESSA LEI TODO MUNDO CONHECE:
PIRATARIA É CRIME.

Mas é sempre bom revisar o porquê e como você pode ser prejudicado com essa prática.

1. Professor investe seu tempo para elaborar os cursos e o site os coloca à venda.

2. Pirata divulga ilicitamente (grupos de rateio), utilizando-se do anonimato, nomes falsos ou laranjas (geralmente o pirata se anuncia como formador de "grupos solidários" de rateio que não visam lucro).

3. Pirata cria alunos fake praticando falsidade ideológica, comprando cursos do site em nome de pessoas aleatórias (usando nome, CPF, endereço e telefone de terceiros sem autorização).

4. Pirata compra, muitas vezes, clonando cartões de crédito (por vezes o sistema anti-fraude não consegue identificar o golpe a tempo).

5. Pirata fere os Termos de Uso, adultera as aulas e retira a identificação dos arquivos PDF (justamente porque a atividade é ilegal e ele não quer que seus fakes sejam identificados).

6. Pirata revende as aulas protegidas por direitos autorais, praticando concorrência desleal e em flagrante desrespeito à Lei de Direitos Autorais (Lei 9.610/98).

7. Concurseiro(a) desinformado participa de rateio, achando que nada disso está acontecendo e esperando se tornar servidor público para exigir o cumprimento das leis.

8. O professor que elaborou o curso não ganha nada, o site não recebe nada, e a pessoa que praticou todos os ilícitos anteriores (pirata) fica com o lucro.

Deixando de lado esse mar de sujeira, aproveitamos para agradecer a todos que adquirem os cursos honestamente e permitem que o site continue existindo.