Estratégia Concursos

4ª Rodada Polícia Federal (Agente de Polícia)

Polícia Federal (Agente de Polícia)

Rodadas Avançadas de Simulados

Autor:

Marcus Vinicius Oliveira de Toloza

20 de Abril de 2025

98276239072 - FABIANO CARBONELL DA SILVA

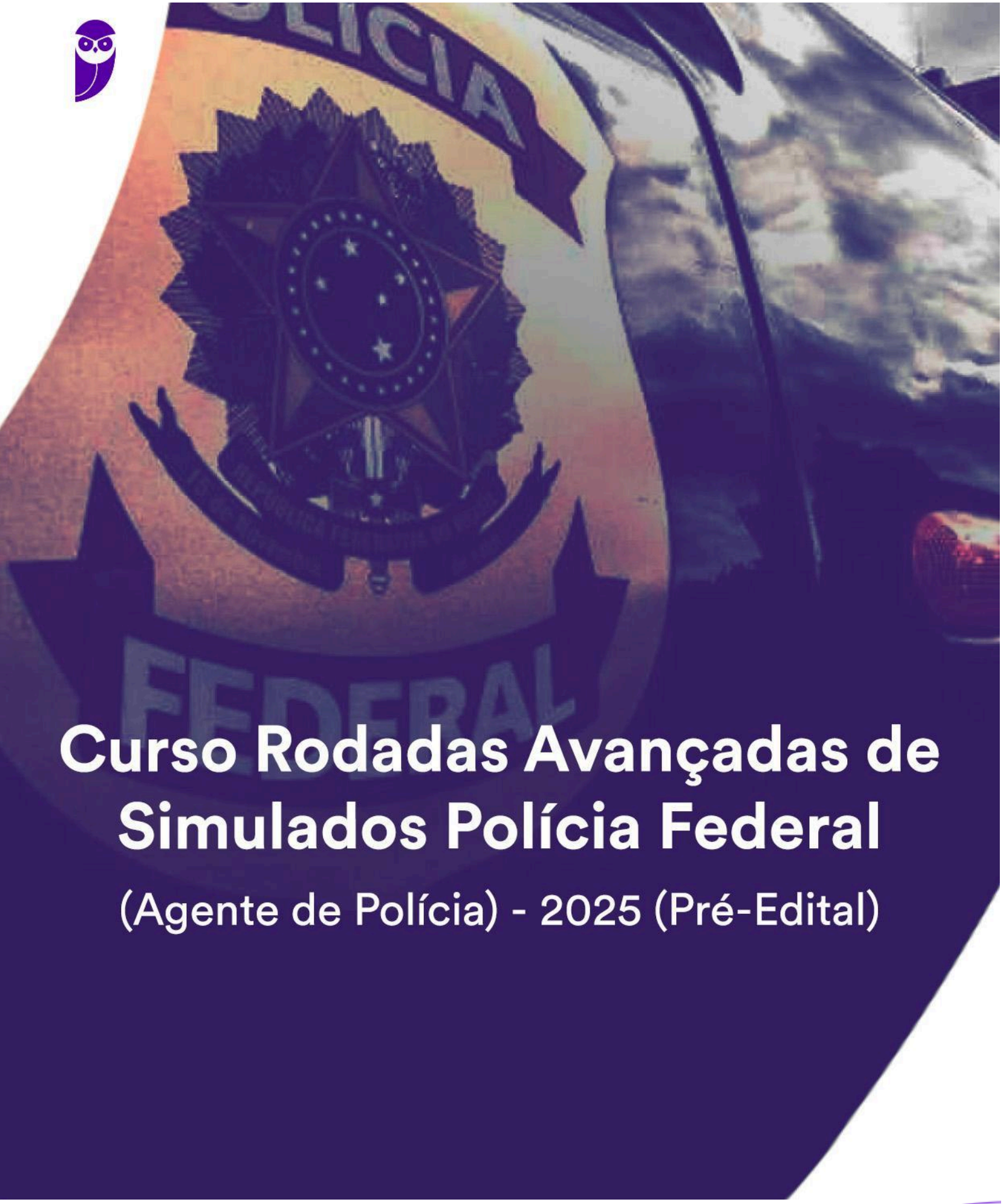

Curso Rodadas Avançadas de Simulados Polícia Federal

(Agente de Polícia) - 2025 (Pré-Edital)

98276239072 - FABIANO CARBONELL DA SILVA

Gabarito Preliminar

Rodada Avançada Polícia Federal (Agente de Polícia)

01	ERRADO	**21**	CERTO	**41**	CERTO	**61**	CERTO	**81**	CERTO	**101**	CERTO
02	CERTO	**22**	ERRADO	**42**	ERRADO	**62**	CERTO	**82**	ERRADO	**102**	ERRADO
03	CERTO	**23**	CERTO	**43**	CERTO	**63**	ERRADO	**83**	ERRADO	**103**	ERRADO
04	ERRADO	**24**	CERTO	**44**	CERTO	**64**	ERRADO	**84**	ERRADO	**104**	CERTO
05	ERRADO	**25**	CERTO	**45**	CERTO	**65**	CERTO	**85**	CERTO	**105**	ERRADO
06	CERTO	**26**	ERRADO	**46**	ERRADO	**66**	ERRADO	**86**	CERTO	**106**	CERTO
07	CERTO	**27**	ERRADO	**47**	ERRADO	**67**	ERRADO	**87**	ERRADO	**107**	CERTO
08	CERTO	**28**	CERTO	**48**	CERTO	**68**	CERTO	**88**	CERTO	**108**	ERRADO
09	ERRADO	**29**	ERRADO	**49**	ERRADO	**69**	CERTO	**89**	CERTO	**109**	ERRADO
10	ERRADO	**30**	CERTO	**50**	CERTO	**70**	CERTO	**90**	CERTO	**110**	CERTO
11	ERRADO	**31**	ERRADO	**51**	CERTO	**71**	CERTO	**91**	ERRADO	**111**	CERTO
12	ERRADO	**32**	ERRADO	**52**	ERRADO	**72**	CERTO	**92**	CERTO	**112**	ERRADO
13	CERTO	**33**	CERTO	**53**	CERTO	**73**	ERRADO	**93**	ERRADO	**113**	ERRADO
14	ERRADO	**34**	CERTO	**54**	ERRADO	**74**	ERRADO	**94**	ERRADO	**114**	CERTO
15	CERTO	**35**	CERTO	**55**	ERRADO	**75**	ERRADO	**95**	CERTO	**115**	ERRADO
16	CERTO	**36**	ERRADO	**56**	CERTO	**76**	CERTO	**96**	ERRADO	**116**	ERRADO
17	ERRADO	**37**	CERTO	**57**	CERTO	**77**	ERRADO	**97**	CERTO	**117**	CERTO
18	ERRADO	**38**	ERRADO	**58**	CERTO	**78**	CERTO	**98**	CERTO	**118**	CERTO
19	CERTO	**39**	ERRADO	**59**	ERRADO	**79**	ERRADO	**99**	ERRADO	**119**	CERTO
20	ERRADO	**40**	ERRADO	**60**	CERTO	**80**	ERRADO	**100**	ERRADO	**120**	ERRADO

Ranking

Clique no link para visualizar o ranking ou copie e cole no seu navegador.

http://estrategi.ac/9bt2z5

O que você achou deste simulado?

Conte-nos como foi sua experiência ao fazer este simulado.

Sua opinião é muito importante para nós!

https://forms.gle/ZquhFz7Kx7jG8Fyu7

Gabarito definitivo e relatório de desempenho

*Ao final de **quinta-feira (24/04)**, o gabarito definitivo, o ranking geral e os relatórios detalhados de desempenho serão liberados na sua área do aluno.*

98276239072 - FABIANO CARBONELL DA SILVA

RECURSOS

*O prazo para enviar recursos se encerra na **terça-feira (22/04)**, às **12:00h**.*

http://estrategi.ac/4jd81r

98276239072 - FABIANO CARBONELL DA SILVA

-- BLOCO I --

LÍNGUA PORTUGUESA + REDAÇÃO OFICIAL

Texto para as questões **1** a **18**.

Está querendo sair das redes sociais?

Essa sua dúvida é porque você está incomodado ou incomodada com as últimas notícias. Suspensão das regulações? Redes sociais desgovernadas? As coisas não estão fáceis naquela que nomeei algoritmosfera – o grande espaço algorítmico no qual todos nós estamos inseridos.

Estar preocupado é um bom começo. Mas a má notícia é que, independente da decisão que você tomar, sair de uma rede social não vai fazer cessar o imenso problema que temos nas mãos. Sair de uma rede social vai ter um efeito semelhante a quando "bloqueamos" uma pessoa com quem não queremos mais falar. Brincadeiras à parte, o assunto é sério. Cada um precisa se envolver nessa discussão, cujo tópico principal é: como podemos ter uma internet melhor? Como as plataformas algorítmicas que formam a *Web* que temos hoje podem jogar a nosso favor, não contra nós?

Para isso, é fundamental ter consciência daquilo que está por trás da nossa grande rede, hoje. Uma pequena quantidade de empresas detêm os nossos dados e produzem os mecanismos que nos mantêm atrelados a esse incessante processo de fornecer dados. Fazer parte disso não é opcional: você não pode simplesmente se desconectar, deixar de usar a internet, deixar de divulgar suas coisas, fazer suas conexões. Vai deixar de usar *apps* de bancos? Vai deixar de usar *apps* para pedir comida e transporte? Vai deixar de usar *softwares* que já têm IA por trás e você nem sabia?

O que precisamos é de um espaço online mais saudável. Que esteja a favor do nosso desenvolvimento individual e enquanto sociedade. Não é sair dele, é lutar para que seja melhor. E claro, fazer tudo o que estiver ao nosso alcance para ter uma melhor relação com a algoritmosfera. Isso inclui menos tempo de tela e menos tempo de redes, sim. Desintoxicar é preciso. Mais natureza. Mais afeto e humanidade.

Mas tudo isso tendo a consciência de que a IA, que entre outras tecnologias está por trás dos mecanismos da nossa internet, não é apenas uma ferramenta que usamos quando queremos e deixamos de lado quando acabamos de usar. Também não é uma ferramenta que veio para consertar alguma coisa que quebrou ou estava ruim, não. A IA é um instrumento político, social e econômico, cujo alcance e cujas consequências possíveis ainda não estão 100% claros. Informar-se e estar aberto a rever concepções, e principalmente não fazer certas concessões é importante. Que concessões não se pode fazer? Abrir mão dos seus direitos, e dos direitos das nossas crianças. Liberdade não é liberdade quando impede o outro de ter a dele. É isso que está em jogo.

Fonte: https://camilaleporace.com.br/index.php/2025/01/ (com alterações)

Com base nas ideias veiculadas no texto, julgue os itens a seguir.

1. Com base na leitura integral do texto, é possível inferir que a principal intenção da autora é apontar os riscos iminentes do uso da inteligência artificial, com base em casos concretos e estatísticas.

Gabarito: Errado

Comentário: Na verdade, a intenção principal do texto é **provocar uma reflexão crítica** sobre os limites da decisão individual frente à lógica da internet, marcada pelo domínio algorítmico e político da IA. Observe o que é dito nos parágrafos 2 e 4:

- "*Mas a má notícia é que, independente da decisão que você tomar,* ***sair de uma rede social não vai fazer cessar o imenso problema que temos nas mãos***." (**PARÁGRAFO 2**)
- "*Não é sair dele, é lutar para que seja melhor*." (**PARÁGRAFO 4**)

2. Ao caracterizar a "algoritmosfera", a autora constrói uma metáfora conceitual que reforça a ideia de que os usuários estão imersos em um ambiente digital global, controlado por lógicas algorítmicas.

Gabarito: Certo

98276239072 - FABIANO CARBONELL DA SILVA

Comentário: Isso mesmo. A metáfora "**algoritmosfera**" aparece no final do parágrafo 1 como uma nomeação criada pela autora para designar "*o grande espaço algorítmico no qual todos nós estamos inseridos*". Essa formulação metafórica cria a imagem de uma atmosfera dominada por algoritmos, ou seja, um ambiente invisível, mas onipresente, que regula e define nossa experiência digital.

3. Sobre a argumentação construída no segundo parágrafo, é correto afirmar que a autora utiliza um raciocínio comparativo e irônico para relativizar a eficácia da decisão individual frente a um problema estrutural.

Gabarito: Certo

Comentário: Exatamente. No segundo parágrafo, a autora afirma que "*sair de uma rede social vai ter um efeito semelhante a quando 'bloqueamos' uma pessoa*", o que constitui um **recurso comparativo** com forte teor de ironia, para mostrar que o problema transcende a decisão individual. Contudo, o tom irônico é suavizado com a frase "*Brincadeiras à parte, o assunto é sério*", **reforçando o compromisso argumentativo**.

4. A sequência de perguntas retóricas no final do terceiro parágrafo tem a função de reforçar o absurdo da proposta de abandonar completamente a tecnologia, valendo-se da ironia e do exagero.

Gabarito: Errado

Comentário: Na verdade, a sequência de perguntas indica não apenas a **impossibilidade prática de abandonar a tecnologia**, mas também como a presença da IA já está tão inserida no cotidiano que sequer é percebida. A autora fecha o parágrafo com: "*softwares que já têm IA por trás e você nem sabia*".

5. Ao afirmar que a IA não é apenas uma ferramenta, a autora busca desconstruir uma concepção que considera reducionista que se apoia na oposição entre técnica e ética, evidenciando que a IA carrega uma intencionalidade moral em seu uso.

Gabarito: Errado

Comentário: Na verdade, a autora se posiciona de maneira crítica frente à compreensão estritamente instrumental da Inteligência Artificial, ou seja, aquela que entende a IA apenas como uma "**ferramenta**" passiva, neutra e à disposição do sujeito. Logo, ao dizer que a IA "*não é apenas uma ferramenta que usamos quando queremos*", ela desconstrói justamente essa concepção utilitarista e reducionista da tecnologia.

6. Ainda de acordo com as ideias apresentadas no texto, pode-se afirmar que a autora articula uma crítica estrutural à lógica do algoritmo, convocando o leitor à ação consciente e política.

Gabarito: Certo

Comentário: Isso mesmo. No final do texto, há um **apelo direto à ação**: a autora propõe uma reação coletiva e politicamente engajada, por meio da criação de direitos digitais e da conscientização sobre os processos que envolvem o uso das tecnologias. Ou seja, o texto **não apenas informa, mas engaja**, e essa convocação reforça o caráter estrutural e politicamente crítico do argumento.

7. Os vocábulos "dúvida" e "últimas" são acentuados graficamente de acordo com a mesma regra de acentuação gráfica.

Gabarito: Certo

Comentário: Isso mesmo. Tanto a palavra **DÚ**-VI-DA quanto a palavra **ÚL**-TI-MAS fazem parte do grupo das **proparoxítonas**, ou seja, a tônica é na antepenúltima sílaba. Esse é o grupo mais fácil de memorizar, já que **todas** as proparoxítonas são acentuadas.

8. Estariam mantidos os sentidos do segundo período do terceiro parágrafo caso se deslocasse o

98276239072 - FABIANO CARBONELL DA SILVA

termo "pequena" para depois do substantivo "quantidade".

Gabarito: Certo

Comentário: Em certos casos, é possível que a inversão do substantivo e do adjetivo altere o sentido da frase, mas não é o caso do período em análise. Observe:

- "*Uma **pequena quantidade** de empresas detêm os nossos dados e produzem os mecanismos que nos mantêm atrelados a esse incessante processo de fornecer dados.*"
- "*Uma **quantidade pequena** de empresas detêm os nossos dados e produzem os mecanismos que nos mantêm atrelados a esse incessante processo de fornecer dados.*"

9. A substituição de "ainda" (terceiro período do último parágrafo) por **porém** preservaria a correção gramatical do texto sem prejudicar a coerência de suas ideias, apesar de os referidos termos terem sentidos distintos.

Gabarito: Errado

Comentário: Da forma como a substituição é sugerida, tanto a coerência textual quanto a correção gramatical são prejudicadas

- "*A IA é um instrumento político, social e econômico, cujo alcance e cujas consequências possíveis **ainda** não estão 100% claros.*"
- "*A IA é um instrumento político, social e econômico, cujo alcance e cujas consequências possíveis ~~**porém**~~ não estão 100% claros.*"

Uma forma adequada de manter a coerência textual e a correção gramatical seria o seguinte:

- "*A IA é um instrumento político, social e econômico, **porém** seu alcance e suas consequências possíveis não estão 100% claros.*"

10. Estaria mantida a correção gramatical do quarto período do último parágrafo caso a partícula "se", em "Informar-se", fosse deslocada para a posição proclítica — **Se informar**.

Gabarito: Errado

Comentário: Em primeiro lugar, vamos às seguintes regras de colocação pronominal:

- **não iniciar orações** com pronome oblíquo átono;
- não inserir pronome após **verbos no futuro**;
- não inserir pronome após **verbos no particípio**;
- se houver palavra invariável antes do verbo, a próclise será obrigatória;
- com verbos no infinitivo, a ênclise e a próclise são aceitas, ainda que haja palavra atrativa antes do verbo;
- com as conjunções coordenativas, a ênclise e a próclise são aceitas.

Agora, vejamos o trecho do texto ao qual a questão se refere:

- "***Informar-se** e estar aberto a rever concepções, e principalmente não fazer certas concessões é importante.*"

Perceba que a situação analisada se encaixa na primeira proibição (não iniciar orações com pronome oblíquo átono). Por isso, a correção gramatical do quarto período do último parágrafo seria prejudicada caso a partícula "**se**", em "**Informar-se**", fosse deslocada para a posição proclítica, uma vez que apenas a ênclise é possível no caso.

11. No terceiro período do terceiro parágrafo, o termo "se" funciona como índice de indeterminação do sujeito.

Gabarito: Errado

Comentário: "*Fazer parte disso não é opcional: você não pode simplesmente **se** desconectar, deixar de usar a internet, deixar de divulgar suas coisas, fazer suas conexões.*" = nesse caso, o termo "**se**" é um pronome reflexivo.

A partícula "se" só pode ser considerada 100% reflexiva se a ação praticada pelo sujeito incidir sobre si mesmo. Além disso, o verbo deve ser **transitivo direto** ou **transitivo direto e indireto**, já

98276239072 - FABIANO CARBONELL DA SILVA

que o termo "se" como pronome reflexivo sempre vai exercer função sintática de **objeto direto** ou **objeto indireto** (embora esse último seja mais raro), por exemplo, em "*Mário **se** feriu ao cortar o cabelo em casa*", entendemos que o próprio Mário feriu a si mesmo.

Por outro lado, o termo "se" como parte integrante do verbo (PIV) é conhecido como um "falso reflexivo", uma vez que **não indica reflexividade evidente**, pois não é possível imaginar que o sujeito do verbo acompanhado por PIV exerça uma ação intencional sobre si mesmo. Além disso, a partícula "se" como PIV não exerce função sintática, por exemplo, em "*Maria **se** queixou de dor nas costas*", não faz sentido dizer que "*Maria queixou Maria*", ou seja, não faz sentido, pois seria totalmente estranho afirmar isso.

12. No segundo período do terceiro parágrafo, a palavra "atrelados" está flexionada no masculino e no plural porque concorda com o termo "mecanismos".

Gabarito: Errado

Comentário: Vejamos o trecho ao qual a questão se refere:

- "*Uma pequena quantidade de empresas detêm os nossos dados e produzem os mecanismos que **nos** mantêm **atrelados** a esse incessante processo de fornecer dados*." = veja que o adjetivo "**atrelados**" se refere ao termo "**nos**".

13. No último período do segundo parágrafo, a flexão da forma verbal "formam" na terceira pessoa do plural justifica-se pela concordância verbal por retomada do termo **plataformas** no plural.

Gabarito: Certo

Comentário: Isso mesmo. Em "*Como as **plataformas** algorítmicas **que** **formam** a Web que temos hoje podem jogar a nosso favor, não contra nós?*", o sujeito da oração é o pronome relativo "**que**", mas a concordância é feita por retomada com o termo ao qual o pronome se refere, no caso o substantivo "**plataformas**".

14. No último período do terceiro parágrafo, o verbo "têm" está no plural em referência a um sujeito composto.

Gabarito: Errado

Comentário: Na verdade, trata-se de um sujeito simples cujo núcleo está no plural. Veja:

- "*Vai deixar de usar **softwares** que já **têm** IA por trás e você nem sabia?*"

15. No quarto período do último parágrafo, a inserção do sinal indicativo de crase em "a" manteria a correção gramatical caso o segmento "rever concepções" fosse substituído por **revisão de concepções**.

Gabarito: Certo

Comentário: Exatamente. O termo "**aberto**" exige um complemento iniciado pela preposição "**a**". Uma vez que o verbo "**rever**" é substituído por "**revisão**", o sinal indicativo de crase passa a ser válido porque há a união da preposição "**a**" exigido pelo termo "**aberto**" e do artigo definido feminino que acompanha o termo "**revisão**". Veja:

- "*Informar-se e estar **aberto a rever concepções**, e principalmente não fazer certas concessões é importante*."
- "*Informar-se e estar **aberto à revisão de concepções**, e principalmente não fazer certas concessões é importante*."

16. Em relação ao uso de vírgula, pode-se afirmar que, no terceiro período do terceiro parágrafo, as vírgulas foram empregadas para separar termos de mesma função sintática.

Gabarito: Certo

Comentário: Isso mesmo. No trecho "*Fazer parte disso não é opcional: você não pode simplesmente se desconectar, deixar de usar a internet, deixar de*

98276239072 - FABIANO CARBONELL DA SILVA

divulgar suas coisas, fazer suas conexões.", há uma enumeração de ações não podemos deixar de fazer, ou seja, as vírgulas ocorrem para separar **termos de mesma função sintática**.

17. No terceiro período do segundo parágrafo, as aspas foram utilizadas para sinalizar uma ironia.

Gabarito: Errado

Comentário: Vejamos o trecho em que as aspas estão inseridas:

*Sair de uma rede social vai ter um efeito semelhante a quando **"bloqueamos"** uma pessoa com quem não queremos mais falar*. = bloquear uma pessoa com quem não queremos mais falar não é uma ironia, ou seja, as aspas foram utilizadas para indicar que o termo foi empregado com sentido diverso do comum. Observe a seguir uma tabela com os principais usos das aspas e seus respectivos exemplos:

USO DAS ASPAS	EXEMPLO
Citação	De acordo com Albert Einstein, "A imaginação é mais importante que o conhecimento".
Ironia, ênfase ou **sentido diverso do esperado**	Aquele "amigo" só traz problemas desde o dia em que o conheci.
Título de artigos, capítulos, livros ou reportagens	O jornal publicou ontem a reportagem "A crise econômica e as consequências na vida dos brasileiros".
Palavras estrangeiras	Ele é considerado um "influencer" nas redes sociais.
Indicação de neologismo ou gíria	Quando era mais novo, ele era considerado um "broto". ("broto" equivale ao atual Fulano é um "gato")
Expressões idiomáticas	Ela estava "pulando de alegria" quando soube da aprovação no concurso público.
Destaque de palavras em um texto	A questão da "depressão" é crucial para o futuro do planeta.

18. O termo "isso", quinto período do quarto parágrafo, desempenha papel dêitico.

Gabarito: Errado

Comentário: A princípio, é importante entender que a função da **coesão textual** é sequenciar as ideias entre os períodos e os parágrafos do texto. Dessa forma, além da conexão do teor das informações, é preciso empregar mecanismos que demonstrem isso também, como as conjunções e os pronomes. Além disso, a **retomada de elementos presentes no texto**, sem repetir com as mesmas palavras, é uma forma de manter um texto organizado e coeso.

Ademais, é possível utilizar, de modo geral, **preposições** (*de, para, com, a*), **pronomes** (*ele, ela, o qual, sua, aquele, este, isso*), **conjunções** (*embora, mas, porém, que*), **palavras denotativas** (*inclusive, entre outras, apenas*), **locuções adverbiais** e **advérbios** (*logo, antes, aqui*). Inclusive, esse é um assunto importantíssimo caso o seu concurso tenha redação também. Por isso, dê uma atenção especial principalmente às conjunções, às locuções adverbiais e aos advérbios.

Nesse sentido, vale a pena retomar o conhecimento sobre ***coesão referencial***, sobretudo quanto aos temas **anáfora** e **catáfora**. Por isso, faremos, a seguir, uma breve revisão sobre alguns detalhes a fim de entender melhor o tema.

- a **coesão referencial dêitica**, também conhecida como *coesão exofórica* ou *díctica*, é um ramo da linguística que leva em conta o contexto situacional dos termos e das expressões empregados em uma frase. Confira um exemplo para melhor entendimento do tema: *Quero que você venha **hoje***. Nesse caso, o termo "**hoje**" só

98276239072 - FABIANO CARBONELL DA SILVA

pode ser entendido através do contexto, pois sem essa ideia não há como precisar que dia é esse"**hoje**".

- a **coesão anafórica**, por sua vez, retoma algo que já foi mencionado no texto e pode ser identificada por meio dos termos *que, esse, aquele, isso*... Por exemplo: ***Macunaíma*** *é uma obra muito interessante.* ***Esse*** *livro pode ser encontrado na internet*. O caso em análise se encaixa nessa situação, veja: "*E claro, fazer tudo o que estiver ao nosso alcance para ter uma melhor relação com a algoritmosfera.* ***Isso*** *inclui menos tempo de tela e menos tempo de redes, sim*." O termo "**isso**" está relacionado à informação mencionada no período anterior (... ***tudo o que estiver ao nosso alcance***).
- a **coesão catafórica** faz referência a algo que será mencionado no texto e pode ser identificada por meio dos termos *esta, isto, cujo*... Meu objetivo é **este**: passar em um bom concurso público.
- também existem as partículas **expletivas**, que são termos e expressões que podem ser retirados sem prejuízo aos sentidos do texto. Esses elementos fazem parte da coesão sequencial.

No que se refere à redação oficial, julgue os itens a seguir.

19. Dentre os atributos dispostos pelo Manual de Redação da Presidência da República (2018) está a impessoalidade, que visa eliminar qualquer traço subjetivo de quem redige, priorizando o interesse público em relação às atribuições do órgão que emite o documento.

Gabarito: Certo

Comentário: Isso mesmo. A **redação oficial** segue princípios que garantem eficiência administrativa, conforme o art. 37 da Constituição Federal de 1988. Esses princípios incluem:

- *clareza e precisão;*
- *objetividade;*
- *concisão;*
- *coesão e coerência;*
- ***impessoalidade;***
- *formalidade e padronização; e*
- *uso da norma padrão da língua portuguesa.*

No caso específico, a **impessoalidade** visa eliminar qualquer traço subjetivo de quem redige, **priorizando o interesse público** em relação às atribuições do órgão que emite o documento.

Nesse sentido, o manual também afirma que a **impessoalidade** se reflete tanto no destinatário da comunicação quanto no tema abordado. Assim sendo, as comunicações podem ser destinadas a um cidadão, a uma instituição privada, a um órgão ou a uma entidade pública, mas **sempre de forma homogênea e impessoal**.

20. Em relação à formalidade e à padronização das correspondências oficiais, conforme o Manual de Redação da Presidência da República, não existe especificamente um padrão oficial de linguagem, o que, embora recomendado, torna o uso da norma padrão nos atos e nas comunicações oficiais facultativo.

Gabarito: Errado

Comentário: Na verdade, é **imprescindível** o uso da norma padrão da língua, que constitui um dos princípios destacados pelo Manual e que também **favorece a clareza do documento**. Veja quais são todos os atributos:

- *clareza e precisão;*
- *objetividade;*
- *concisão;*
- *coesão e coerência;*
- *impessoalidade;*
- *formalidade e padronização; e*
- ***uso da norma padrão da língua portuguesa.***

21. Uma das sugestões do Manual de Redação da Presidência da República é a utilização de palavras e expressões em outro idioma apenas quando

98276239072 - FABIANO CARBONELL DA SILVA

indispensáveis, em razão de serem designações ou expressões de uso já consagrado ou de não terem exata tradução.

Gabarito: Certo

Comentário: Além dos **atributos** *clareza e precisão, objetividade, concisão, coesão e coerência, impessoalidade, formalidade e padronização e uso da norma padrão da língua portuguesa*, o Manual de Redação da Presidência da República também apresenta algumas sugestões importantes para a obtenção de clareza. Observe:

*a) utilizar palavras e expressões **simples**, em seu sentido comum, salvo quando o texto versar sobre assunto técnico, hipótese em que se utilizará nomenclatura própria da área;*

*b) usar frases curtas, bem estruturadas; apresentar as orações na ordem direta e evitar intercalações excessivas. **Em certas ocasiões, para evitar ambiguidade, sugere-se a adoção da ordem inversa da oração**;*

c) buscar a uniformidade do tempo verbal em todo o texto;

d) não utilizar regionalismos e neologismos;

e) pontuar adequadamente o texto;

*f) **explicitar o significado da sigla** na primeira referência a ela; e*

*g) utilizar palavras e expressões em outro idioma apenas quando indispensáveis, em razão de serem designações ou expressões de uso já consagrado ou de não terem exata tradução. Nesse caso, **grafe-as em itálico**, conforme orientações do Manual.*

22. A concisão é uma das características do Manual de Redação da Presidência da República para as comunicações oficiais que visam a exatidão das informações transmitidas.

Gabarito: Errado

Comentário: O erro da questão está em misturar concisão e precisão. É a **precisão** que se refere à exatidão das informações transmitidas. Na redação oficial, é crucial que os dados sejam apresentados de forma **precisa e correta**, sem distorções ou erros que comprometam a credibilidade do texto. Isso pressupõe a verificação cuidadosa dos fatos e a utilização de fontes confiáveis para embasar as informações apresentadas.

23. Em comunicações oficiais da Polícia Federal, com o objetivo de facilitar o entendimento do texto, deve-se empregar linguagem objetiva.

Gabarito: Certo

Comentário: Isso mesmo. A linguagem adequada é a **objetiva**, que está relacionada a um dos atributos da Redação Oficial, a objetividade. De acordo com o Manual de Redação da Presidência da República, ser objetivo é **ir diretamente ao assunto** que se deseja abordar, sem voltas e sem redundâncias.

Para conseguir isso, é fundamental que o redator saiba de antemão qual é a ideia principal e quais são as secundárias e procurar perceber **certa hierarquia de ideias** que existe em todo texto de alguma complexidade: as fundamentais e as secundárias. Essas últimas podem esclarecer o sentido daquelas, detalhá-las, exemplificá-las; mas existem também ideias secundárias que não acrescentam informação alguma ao texto, nem têm maior relação com as fundamentais, podendo, por isso, ser dispensadas, o que também proporcionará mais objetividade ao texto.

Nesse sentido, a **objetividade** conduz o leitor ao contato mais direto com o assunto e com as informações, sem subterfúgios, sem excessos de palavras e de ideias. Lembrando que é errado supor que a objetividade suprime a delicadeza de expressão ou torna o texto rude e grosseiro.

24. Na redação oficial, o emissor é sempre o serviço público, o conteúdo diz respeito às suas funções, e o destinatário pode ser o público, uma entidade privada ou outro órgão dos Poderes.

Gabarito: Certo

98276239072 - FABIANO CARBONELL DA SILVA

Comentário: Isso mesmo. Entende-se que **o comunicador é o serviço público**, a mensagem deve se de interesse coletivo e o destinatário pode ser tanto o próprio serviço público quanto particulares. Em razão disso, não há lugar para tratar de questões pessoais ou para utilizar a máquina pública em benefício próprio.

Além disso, a **redação oficial** segue princípios que garantem eficiência administrativa, conforme o art. 37 da Constituição Federal de 1988. Esses princípios incluem:

- *clareza e precisão;*
- *objetividade;*
- *concisão;*
- *coesão e coerência;*
- *impessoalidade;*
- *formalidade e padronização; e*
- *uso da norma padrão da língua portuguesa.*

DIREITO ADMINISTRATIVO

Com base na Lei n.º 14.133/2021, julgue o item a seguir.

25. Os contratos que tenham por objeto operação de crédito, interno ou externo, não se subordinam ao regime da Lei de Licitações e Contratos Administrativos.

Gabarito: Certo

Comentário: Nos termos da *Lei n.º 14.133/2021, Art. 3º Não se subordinam ao regime desta Lei:*

I - contratos que tenham por objeto operação de crédito, interno ou externo, e gestão de dívida pública, incluídas as contratações de agente financeiro e a concessão de garantia relacionadas a esses contratos;

II - contratações sujeitas a normas previstas em legislação própria.

No que se refere aos princípios expressos e implícitos da administração pública e à organização administrativa do Estado, julgue os itens subsequentes.

26. Em razão do dever de observação ao princípio da autotutela, a administração pode anular ou revogar seus próprios atos, por motivo de conveniência ou oportunidade, quando eivados de vícios que os tornam ilegais, respeitados os direitos adquiridos.

Gabarito: Errado

Comentário: A afirmação está incorreta ao misturar os conceitos de anulação e revogação, bem como seus respectivos fundamentos. A administração anula atos ilegais e revoga atos legais por razões de conveniência e oportunidade.

SUM-473. A administração pode anular seus próprios atos, quando eivados de vícios que os tornam ilegais, porque deles não se originam direitos; ou revogá-los, por motivo de conveniência ou oportunidade, respeitados os direitos adquiridos, e ressalvada, em todos os casos, a apreciação judicial.

27. A repartição de competências entre pessoas jurídicas distintas resulta da desconcentração administrativa.

Gabarito: Errado

Comentário: A repartição de competências entre pessoas jurídicas distintas é resultado da descentralização administrativa, e não da desconcentração.

A desconcentração administrativa ocorre quando a mesma pessoa jurídica (União, Estado, Município) distribui competências entre seus próprios órgãos internos, sem criar novas entidades com personalidade jurídica própria. Há uma delegação de atribuições dentro da mesma estrutura hierárquica. Exemplos: a criação de secretarias dentro de um ministério ou a delegação de poderes a um chefe de seção.

98276239072 - FABIANO CARBONELL DA SILVA

Por outro lado, a descentralização administrativa implica a transferência de competências da União, Estados ou Municípios para outras pessoas jurídicas, que podem ser da administração indireta (autarquias, fundações públicas, empresas públicas, sociedades de economia mista) ou particulares (mediante concessão, permissão ou autorização). Nessa modalidade, cria-se uma nova entidade com personalidade jurídica própria para o exercício de determinadas atividades administrativas.

DIREITO CONSTITUCIONAL

Em relação à seguridade social e aos direitos e garantias fundamentais, nos termos da Constituição Federal 1988, julgue os itens a seguir.

28. As receitas dos Estados, do Distrito Federal e dos Municípios destinadas à seguridade social constarão dos respectivos orçamentos, não integrando o orçamento da União.

Gabarito: Certo

Comentário: *Nos termos da CF/88, Art. 195 § 1º As receitas dos Estados, do Distrito Federal e dos Municípios destinadas à seguridade social constarão dos respectivos orçamentos, não integrando o orçamento da União.*

29. O pedido expresso de perda da nacionalidade brasileira perante autoridade brasileira competente impede o interessado de readquirir sua nacionalidade brasileira originária.

Gabarito: Errado

Comentário: *CF/88, Art. 12. § 4º - Será declarada a perda da nacionalidade do brasileiro que:*

II - fizer pedido expresso de perda da nacionalidade brasileira perante autoridade brasileira competente, ressalvadas situações que acarretem apatridia.

§ 5º A renúncia da nacionalidade, nos termos do inciso II do § 4º deste artigo, não impede o interessado de readquirir sua nacionalidade brasileira originária, nos termos da lei.

No que se refere à segurança pública, julgue o item a seguir.

30. O exercício do direito de greve, sob qualquer forma ou modalidade, é vedado a todos os servidores públicos que atuem diretamente na área de segurança pública.

Gabarito: Certo

Comentário: *O exercício do direito de greve, sob qualquer forma ou modalidade, é vedado aos policiais civis e a todos os servidores públicos que atuem diretamente na área de segurança pública (STF, ARE 654.432, rel. p/ o ac. min. Alexandre de Moraes, j. 5-4-2017, P, DJE de 11-6-2018, Tema 541).*

DIREITO PENAL E PROCESSUAL PENAL

Considerando a Parte Geral do Código Penal e a doutrina correlata, julgue os itens a seguir.

31. Nos crimes cometidos sem violência ou grave ameaça à pessoa, reparado o dano ou restituída a coisa, até o momento da prolação da sentença, por ato voluntário do agente, deve-se aplicar o arrependimento posterior.

Gabarito: Errado

Comentário: O artigo 16 do Código Penal estabelece que o arrependimento posterior deve ocorrer até o recebimento da denúncia ou da queixa, e não até a prolação da sentença. Portanto, mesmo que o dano seja reparado ou a coisa restituída por ato voluntário do agente, se isso ocorrer após o recebimento da denúncia ou da queixa, não se

98276239072 - FABIANO CARBONELL DA SILVA

aplica a causa de diminuição de pena do arrependimento posterior. Nesse caso, a reparação do dano pode ser considerada como atenuante genérica (artigo 65, inciso III, alínea "b", do Código Penal), mas não como arrependimento posterior.

CP, Arrependimento posterior: Art. 16 - Nos crimes cometidos sem violência ou grave ameaça à pessoa, reparado o dano ou restituída a coisa, até o recebimento da denúncia ou da queixa, por ato voluntário do agente, a pena será reduzida de um a dois terços.

Julgue o seguinte item, relativo a crime contra a administração pública.

32. Comete crime de condescendência criminosa o agente que exige vantagem indevida de outrem, ainda que fora da função ou antes de assumi-la, mas em razão dela.

Gabarito: Errado

Comentário: O crime de exigir vantagem indevida, ainda que fora da função ou antes de assumi-la, mas em razão dela, configura o crime de concussão, previsto no artigo 316 do Código Penal:

Concussão: Art. 316 - Exigir, para si ou para outrem, direta ou indiretamente, ainda que fora da função ou antes de assumi-la, mas em razão dela, vantagem indevida:

Pena - reclusão, de 2 (dois) a 12 (doze) anos, e multa.

O crime de condescendência criminosa ocorre quando o funcionário público, por indulgência, deixa de responsabilizar subordinado que cometeu infração no exercício do cargo ou função, ou lhe releva a pena ou sanção disciplinar.

Condescendência criminosa: Art. 320 - Deixar o funcionário, por indulgência, de responsabilizar subordinado que cometeu infração no exercício do cargo ou, quando lhe falte competência, não levar o fato ao conhecimento da autoridade competente:

Pena - detenção, de quinze dias a um mês, ou multa.

Em relação à busca e apreensão, julgue o item a seguir.

33. A busca domiciliar deverá ser precedida da expedição de mandado quando a própria autoridade policial ou judiciária não a realizar pessoalmente.

Gabarito: Certo

Comentário: *CPP, Art. 241. Quando a própria autoridade policial ou judiciária não a realizar pessoalmente, a busca domiciliar deverá ser precedida da expedição de mandado.*

LEGISLAÇÃO ESPECIAL

Com base no Estatuto da Criança e do Adolescente, julgue o item a seguir.

34. O Estado tem o dever de assegurar o atendimento em creche e pré-escola às crianças de zero a cinco anos de idade.

Gabarito: Certo

Comentário: *Lei nº 8.069/1990, Art. 54. É dever do Estado assegurar à criança e ao adolescente:*

IV – atendimento em creche e pré-escola às crianças de zero a cinco anos de idade;

Acerca da Lei nº 10.826/2003, julgue o item a seguir.

35. As armas de fogo utilizadas pelos profissionais de segurança privada dos prestadores de serviços de segurança privada serão de propriedade, responsabilidade e guarda das respectivas empresas, somente podendo ser utilizadas quando em serviço, e sendo o certificado de registro e a autorização de porte expedidos pela Polícia Federal em nome da empresa.

Gabarito: Certo

98276239072 - FABIANO CARBONELL DA SILVA

Comentário: Nos termos da *Lei nº 10.826/2003, Art. 7º As armas de fogo utilizadas pelos profissionais de segurança privada dos prestadores de serviços de segurança privada e das empresas e dos condomínios edilícios possuidores de serviços orgânicos de segurança privada, constituídas na forma da lei, serão de propriedade, responsabilidade e guarda das respectivas empresas, somente podendo ser utilizadas quando em serviço, devendo essas observarem as condições de uso e de armazenagem estabelecidas pelo órgão competente, sendo o certificado de registro e a autorização de porte expedidos pela Polícia Federal em nome da empresa.*

A respeito da Lei nº 9.455/1997, julgue o item seguinte.

36. Se o crime de tortura é cometido contra agente público, a pena do delito será aumentada de um sexto até um terço.

Gabarito: Errado

Comentário: O aumento ocorre se o crime é cometido por agente público e não contra agente público.

Lei nº 9.455/1997, Art. 1º § 4º Aumenta-se a pena de um sexto até um terço:

I - se o crime é cometido por agente público;

II – se o crime é cometido contra criança, gestante, portador de deficiência, adolescente ou maior de 60 (sessenta) anos;

III - se o crime é cometido mediante sequestro.

ESTATÍSTICA

Situação hipotética:

Pesquisadores realizaram um estudo sobre a utilização de celulares entre a população de 50 a 60 anos de determinada cidade da região sudeste. Esse estudo revelou que, em média, essas pessoas utilizam 4 horas diárias desse dispositivo.

A tabela a seguir apresenta algumas medidas estatísticas obtidas a partir dos dados coletados:

Medida estatística	Tempo (horas/dia)
1° Decil (D1)	2,0
9° Decil (D9)	7,0
1° Quartil (Q1)	3,0
2° Quartil (Q2)	4,5
3° Quartil (Q3)	5,5

Com base na situação hipotética apresentada, julgue os itens **37 a 39** a seguir.

37. Com base nos dados fornecidos, podemos afirmar que 50% da população estudada utiliza o celular por até 4,5 horas diárias.

Gabarito: Certo

Comentário: Sabemos que a mediana divide uma série em duas partes iguais. Como temos a mediana representada por Q2, temos que, de fato, 50% da população estudada utiliza o celular por até 4,5 horas diárias.

Dessa forma, o item está **CERTO**.

38. A distribuição dos tempos indicada possui assimetria positiva.

Gabarito: Errado

Comentário: Como temos mediana (Q2) = 4,5 e média = 4,0, teremos:

Média < Mediana.

Logo, sugere uma distribuição com **assimetria negativa.**

Dessa forma, o item está **ERRADO**.

98276239072 - FABIANO CARBONELL DA SILVA

39. O índice percentílico de curtose foi igual a 0,25, o que sugere que a distribuição dos tempos seja platicúrtica.

Gabarito: Errado

Comentário: Para o cálculo do coeficiente de curtose, teremos:

$$C_P = \frac{Q_3 - Q_1}{2 \times (P_{90} - P_{10})} = \frac{Q_3 - Q_1}{2 \times (D_9 - D_1)}$$

Substituindo os valores apresentados:

$$Cp = \frac{5{,}5-3{,}0}{2\ x\ (7{,}0-2{,}0)} = \frac{2{,}5}{10} = 0,25$$

Em relação à análise desse coeficiente, temos:

Coeficiente Percentílico de Curtose	Curva
$C_P < 0,263$	Leptocúrtica
$C_P = 0,263$	Mesocúrtica
$C_P > 0,263$	Platicúrtica

Portanto, o item está **ERRADO**, pois um **CP = 0,25** sugere uma curva **Leptocúrtica**.

Situação hipotética:

Um especialista foi contratado para verificar o motivo da redução no número de vendas de determinada loja de roupas moda praia. Para essa análise, ele deverá considerar diversos fatores que não permanecerão constantes durante toda a investigação, tais como a abertura de novas lojas na região, os períodos de festas locais, o período de frio intenso ou calor extremo, o aumento de compras online por parte dos clientes, o mês de férias das pessoas, etc.

Com base nessas informações e nos conceitos iniciais de Estatística, principalmente envolvendo os métodos experimental e estatístico, julgue o item seguinte.

40. Para esse caso hipotético, o mais indicado para o especialista é utilizar o método experimental, que admite e registra todas as possíveis variações das causas presentes, procurando determinar a influência de cada fator no resultado.

Gabarito: Errado

Comentário: Pessoal, de maneira resumida acerca dos métodos estatísticos, temos:

Portanto, vamos analisar a assertiva, destacando o **ERRO**:

"Para esse caso hipotético, o mais indicado para o especialista é utilizar o ***~~método experimental~~****, que admite e registra todas as possíveis variações das causas presentes, procurando determinar a influência de cada fator no resultado."*

De fato, temos várias variações possíveis. No entanto, o responsável e mais indicado para essa configuração é o **MÉTODO ESTATÍSTICO**. Dessa forma, o item está **ERRADO**

Situação hipotética:

Uma determinada concessionária possui três equipes A, B e C para realização das revisões dos carros dos clientes em garantia. A distribuição das revisões é dada por:

- **Equipe A:** Realiza 28% das revisões da concessionária.

98276239072 - FABIANO CARBONELL DA SILVA

- **Equipe B:** Realiza 48% das revisões da concessionária.
- **Equipe C:** Realiza 24% das revisões da concessionária.

Em relação a essas revisões, alguns clientes realizam reclamações sobre o serviço realizado, da seguinte forma:

- **4%** das revisões realizadas pela Equipe A sofrem reclamações;
- **8%** das revisões realizadas pela Equipe B sofrem reclamações;
- **6%** das revisões realizadas pela Equipe C sofrem reclamações;

Considere que a equipe de pós-venda selecionou, aleatoriamente, uma das revisões realizadas pela concessionária e verificou que ela sofreu reclamação do cliente. Com base na situação hipotética apresentada, julgue os itens **41** e **42** a seguir.

41. A probabilidade de que essa revisão com reclamação tenha sido realizada pela Equipe C é inferior a 0,25.

Gabarito: Certo

Comentário: Com forma de revisão, teremos:

Probabilidade Condicional

Probabilidade Condicional: $P(B|A) = \frac{P(A \cap B)}{P(A)}$

Teorema da Multiplicação: $P(A \cap B) = P(B|A) \times P(A)$

Teorema da Probabilidade Total: $P(I) = P(I|A) \times P(A) + P(I|B) \times P(B)$

Teorema de Bayes: $P(A|I) = \frac{P(I \cap A)}{P(I)} = \frac{P(I|A) \times P(A)}{P(I|A) \times P(A) + P(I|B) \times P(B)}$

Independência

A e B independentes $\leftrightarrow P(A \cap B) = P(A) \times P(B)$

A, B e C independentes $\rightarrow P(A \cap B \cap C) = P(A) \times P(B) \times P(C)$

Primeiramente, vamos calcular a probabilidade total de reclamação, utilizando o teorema da probabilidade total:

- PR = P(a)*P(R/a) + P(b)*P(R/b) + P(c)*P(R/c)
- PR = 0,28 * 0,04 + 0,48 * 0,08 + 0,24 * 0,06
- **PR = 0,064**

Agora, com o Teorema de Bayes:

$$P\left(\frac{C}{R}\right) = \frac{P\left(\frac{R}{C}\right)*P(C)}{PR}$$

$$P\left(\frac{C}{R}\right) = \frac{0{,}06*0{,}24}{0{,}064} = 0,225$$

Portanto, temos o item como **CERTO**.

42. A probabilidade de que uma revisão com reclamação tenha sido realizada pela Equipe C é menor do que a probabilidade de que tenha sido realizada pela Equipe A.

Gabarito: Errado

Comentário: Como já calculamos a probabilidade total de reclamações = PR = 0,06 e a probabilidade de a reclamação ter vindo da equipe C P(C/R) = 0,225, vamos calcular a probabilidade de a reclamação ter vindo da Equipe A.

$$P\left(\frac{A}{R}\right) = \frac{P\left(\frac{R}{A}\right)*P(A)}{PR}$$

$$P\left(\frac{A}{R}\right) = \frac{0{,}04*0{,}28}{0{,}064} = 0,175$$

Portanto, temos o item como **ERRADO**, pois **a** $P\left(\frac{C}{R}\right) > P\left(\frac{A}{R}\right)$**.**

Situação hipotética:

Um estatístico verificou que a quantidade de sobremesas vendidas por dia em uma doceria pode ser representada por uma variável aleatória contínua Y, com função densidade dada por:

$$f(y) = \frac{\alpha}{2} * \left(y^2 - 16y + 64\right), \; para \; 6 \leq y < 10,$$

Em que α > 0 é uma constante de normalização. Com base na função apresentada, julgue os itens **43** a **45** a seguir.

43. O valor da constante de normalização α é superior a 0,2.

Gabarito: Certo

Comentário: Considerando que a integral da função densidade no intervalo indicado $6 \leq y < 10$ deve ser igual a 1, teremos:

$$1 = \int_6^{10} f(y)dy$$

Como f(y) foi apresentada, substituímos:

$$1 = \int_6^{10} \frac{\alpha}{2} * \left(y^2 - 16y + 64\right)dy$$

Como α /2 é uma constante, podemos retirá-la da integração, ficando com:

$$1 = \frac{\alpha}{2} * \int_6^{10} \left(y^2 - 16y + 64\right)dy$$

Integrando em relação a Y:

$$1 = \frac{\alpha}{2} * \left|\frac{y^3}{3} - \frac{16y^2}{2} + 64y\right|_6^{10}$$

$$1 = \frac{\alpha}{2} * \left[\left(\frac{10^3}{3} - \frac{16*10^2}{2} + 64 * 10\right) - \left(\frac{6^3}{3} - \frac{16*6^2}{2} + 64 * 6\right)\right]$$

$$1 = \frac{\alpha}{2} * \left[\left(\frac{1000}{3} - \frac{1600}{2} + 640\right) - \left(\frac{216}{3} - \frac{576}{2} + 384\right)\right]$$

$$1 = \frac{\alpha}{2} * \left[\left(\frac{1000}{3} - 160\right) - (168)\right]$$

$$1 = \frac{\alpha}{2} * \left[\frac{1000}{3} - 328\right]$$

$$1 = \frac{\alpha}{2} * \left[\frac{1000-984}{3}\right]$$

$$1 = \frac{\alpha}{2} * \left[\frac{16}{3}\right]$$

$$\alpha = \frac{6}{16} = \frac{3}{8} = 0,375$$

Portanto, o item está **CERTO**.

OBS: Caso o aluno "esquecesse" que tinha α /2 como constante e não somente o α, poderia chegar a um resultado divergente.

44. O valor esperado da variável aleatória Y é igual a 8.

Gabarito: Certo

Comentário: Para calcular o valor esperado de uma variável aleatória, teremos:

$$E[Y] = \int_6^{10} y * f(y)dy$$

Substituindo o valor de f(y), teremos:

$$E[Y] = \int_6^{10} y * \frac{\alpha}{2} * \left(y^2 - 16y + 64\right)dy$$

Sabemos que α = 3/8 e se trata de uma constante:

$$E[Y] = \frac{3}{8*2} * \int_6^{10} y * \left(y^2 - 16y + 64\right)dy$$

$$E[Y] = \frac{3}{16} * \int_6^{10} \left(y^3 - 16y^2 + 64y\right)dy$$

$$E[Y] = \frac{3}{16} * \left|\frac{y^4}{4} - \frac{16y^3}{3} + \frac{64y^2}{2}\right|_6^{10}$$

$$E[Y] = \frac{3}{16} * \left[\left(\frac{10^4}{4} - \frac{16*10^3}{3} + \frac{64*10^2}{2}\right) - \left(\frac{6^4}{4} - \frac{16*6^3}{3} + \frac{64*6^2}{2}\right)\right]$$

$$E[Y] = \frac{3}{16} * \left[\left(\frac{10000}{4} - \frac{16000}{3} + \frac{6400}{2}\right) - \left(\frac{1296}{4} - \frac{3456}{3} + \frac{2304}{2}\right)\right]$$

$$E[Y] = \frac{3}{16} * \left[\left(2500 - \frac{16000}{3} + 3200\right) - (324 - 1152 + 1152)\right]$$

$$E[Y] = \frac{3}{16} * \left[5376 - \frac{16000}{3}\right]$$

$$E[Y] = \frac{3*5376}{16} - \frac{16000}{16}$$

$$E[Y] = 8$$

Portanto, temos o item como **CERTO**.

45. P(Y = 6) + P(Y = 9) = P(Y = 7) + P(Y = 8).

Gabarito: Certo

Comentário: Pessoal, cabe simplesmente sabermos que a variável aleatória Y é contínua, portanto, P(Y=y) é sempre igual a 0. Dessa forma, teremos:

- P(Y = 6) = 0
- P(Y = 9) = 0
- P(Y = 7) = 0
- P(Y = 8) = 0

Portanto, 0 + 0 = 0 + 0.

Dessa forma, temos o item como **CERTO**.

Situação hipotética:

Para um levantamento estatístico foi coletada uma amostra aleatória simples, cujo tamanho é 16, de uma população normalmente distribuída, tendo esta tanto a média (μ) quanto o desvio padrão (σ) desconhecidos.

Estimou-se que 12 ± 4 é um intervalo de confiança de 95% para a média populacional, utilizando-se a distribuição t de Student. Ainda, as hipóteses nula e alternativa formuladas são, respectivamente, H_o: $\mu = 10$ e H_1: $\mu \neq 10$.

Considere o valor crítico tabelado $t_{0,025;15} = 2,1$

Com base nas informações apresentadas, julgue os itens **46** a **48** a seguir.

46. Dado que a variância populacional é desconhecida e os dados seguem uma distribuição normal, é correto afirmar que o teste t para a média populacional possui 16 graus de liberdade.

Gabarito: Errado

Comentário: Para a distribuição t de Student, teremos:

$$\boxed{nº\ de\ graus\ de\ liberdade = n - 1}$$

Como a questão forneceu n = 16 amostras, teremos 16 – 1 = **15 graus de liberdade**.

O item está **ERRADO**.

47 O valor do erro padrão da média (EP) é superior a 2.

Gabarito: Errado

Comentário: Para o caso de estimação intervalar, em que o intervalo da média (cuja variância é desconhecida), teremos:

Intervalo para a Média – Variância desconhecida (distribuição t-Student):

Margem de Erro: $E = t_{n-1} \cdot \frac{s}{\sqrt{n}}$; Tamanho Amostral: $n = \left(t \cdot \frac{s}{E}\right)^2$

A margem de erro informada foi E = 4. Além disso, $t_{0,025;15} = 2,1$. Por fim, temos n = 16. Dessa forma, conseguimos calcular o desvio padrão (s):

$$4 = 2,1 * \frac{s}{\sqrt{16}}$$

$$s = \frac{16}{2,1}$$

Agora, calculando o erro padrão da média EP:

$$EP = \frac{s}{\sqrt{n}} = \frac{16}{2,1*\sqrt{16}} = \frac{4}{2,1} < 2,0$$

Portanto, o item está **ERRADO**.

48. O valor do teste t calculado para a hipótese nula é superior a 1.

Gabarito: Certo

Comentário: Para o teste t, teremos:

$$t = \frac{\bar{X} - \mu_0}{\frac{s}{\sqrt{n}}}$$

A questão nos forneceu todas essas informações e já calculamos s, logo:

$$t = \frac{12-10}{\frac{4}{2,1}} = \frac{2*2,1}{4} = \frac{4,2}{4} > 1$$

Portanto, o item está **CERTO**.

RACIOCÍNIO LÓGICO

Em relação à lógica proposicional, julgue os itens **49 e 50** a seguir, considerando os símbolos lógicos comuns e P, Q e R como proposições simples.

49. A sentença "O aumento da criminalidade é resultado da ausência de políticas públicas." pode ser corretamente representada pela proposição lógica Q → R.

98276239072 - FABIANO CARBONELL DA SILVA

Gabarito: Errado

Comentário: Pessoal, analisando a proposição apresentada, verificamos que há a presença de somente 1 verbo, portanto, estamos diante de uma proposição simples, do tipo Q.

*"O aumento da criminalidade **é** resultado da ausência de políticas públicas."*

Dessa forma, o item está **ERRADO**.

OBS: Esse é o posicionamento do CEBRASPE em questões similares. Note que não poderia o candidato partir para uma análise de causa / efeito, mas sim, verificar que se trata de uma única afirmação.

50. A última coluna da tabela-verdade da proposição (P v Q) ↔ (R v ~P ^ Q), listados de cima para baixo, apresenta a sequência: V F F F V V V V.

Gabarito: Certo

Comentário: Montando a tabela-verdade:

P	Q	R	P v Q	R v ~P	R v ~P ^ Q	(P v Q) ↔ (R v ~P ^ Q)
V	V	V	V	V	V	V
V	V	F	V	F	F	F
V	F	V	V	V	F	F
V	F	F	V	F	F	F
F	V	V	V	V	V	V
F	V	F	V	V	V	V
F	F	V	F	V	F	V
F	F	F	F	V	F	V

Portanto, o item está **CERTO**.

Considere as seguintes proposições:

- **P1:** Se o Governo ordenou e o Comando autorizou, então a operação White Coffe foi deflagrada.
- **P2:** Se a operação White Coffe foi deflagrada, então os traficantes internacionais foram localizados.
- **P3:** Se os traficantes internacionais foram localizados, então a droga foi apreendida e não houve confronto.
- **P4:** Se a droga foi apreendida e não houve confronto, então a operação foi realizada com êxito.

Tendo como referência essas proposições, julgue os itens **51 e 53** a seguir, a respeito das estruturas lógicas, lógicas de argumentação e proposicional.

51. O argumento em que as proposições **P1 a P4** são as premissas e a conclusão é a proposição "Se o Governo ordenou e o Comando autorizou, então a operação foi realizada com êxito" é um argumento válido.

Gabarito: Certo

Comentário: Cumpre aqui fazermos um breve resumo dessa etapa, segundo **ESTRATÉGIA (2025):**

Método da transitividade da condicional

Suponha que temos um argumento formado por:

- ***Premissas** no formato condicional em que o antecedente da premissa posterior é igual ao consequente da premissa anterior;*
- ***Conclusão** no formato condicional cujo antecedente é o antecedente da primeira premissa e cujo consequente é o consequente da última premissa.*

*Esse tipo de argumento, independentemente do número de premissas, **é sempre válido**. Costuma-se chamar essa propriedade de transitividade do condicional. Veja um exemplo desse tipo de argumento válido com 4 premissas:*

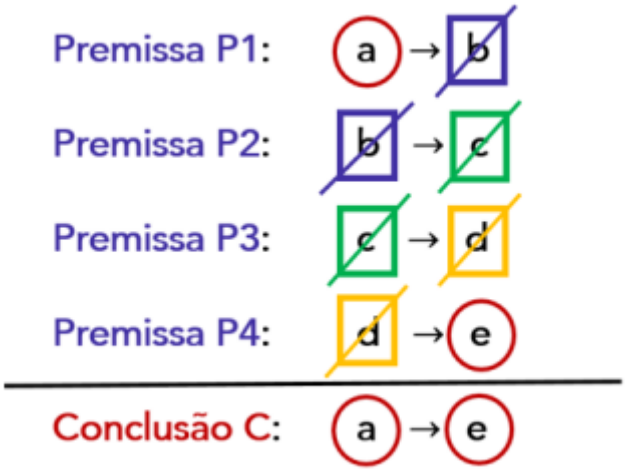

Analisando a nossa situação, teremos:

- **P1:** Se o Governo ordenou e o Comando autorizou, então ~~a operação White Coffe foi deflagrada~~.
- **P2:** Se ~~a operação White Coffe foi deflagrada~~, então ~~os traficantes internacionais foram localizados~~.
- **P3:** Se ~~os traficantes internacionais foram localizados~~, então ~~a droga foi apreendida e não houve confronto~~.
- **P4:** Se ~~a droga foi apreendida e não houve confronto~~, então a operação foi realizada com êxito.
- **C:** Se o Governo ordenou e o Comando autorizou, então a operação foi realizada com êxito.

De fato, temos a Conclusão na forma apresentada. Sendo assim, utilizando o método da transitividade da condicional, verificamos que **o argumento é válido**. Item **CERTO**.

52. A negação da proposição P3 é dada por "Os traficantes internacionais foram localizados e a droga não foi apreendida e houve confronto".

Gabarito: Errado

Comentário: A negação da condicional é feita mantendo-se o antecedente e negando-se o consequente, substituindo a condicional pela conjunção.

- **Mantém antecedente** = Os traficantes internacionais foram localizados;
- **Nega o consequente** = A droga não foi apreendida OU houve confronto.

Dessa forma, verificamos que ficará:

*"Os traficantes internacionais foram localizados e a droga não foi apreendida **OU** houve confronto."*

Portanto, o item está **ERRADO**.

53. A proposição P4 é logicamente equivalente a "A operação foi realizada com êxito, pois a droga foi apreendida e não houve confronto".

Gabarito: Certo

Comentário: Vejamos que:

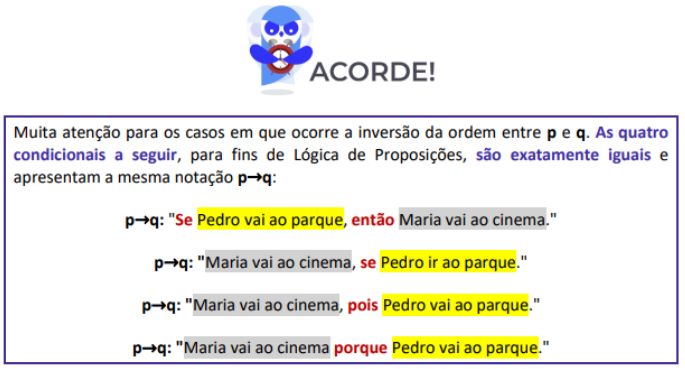

A proposição P4 apresentada foi:

- **P4:** Se a droga foi apreendida e não houve confronto, então a operação foi realizada com êxito.

Utilizando o "pois", devemos simplesmente inverter a ordem entre antecedente e consequente, logo:

"A operação foi realizada com êxito, pois a droga foi apreendida e não houve confronto".

Dessa forma, o item está **CERTO.**

Situação hipotética:

Considere os seguintes conjuntos:

- **{A} =** Policiais federais;
- **{B} =** Pessoas que praticam tiro;
- **{C} =** Pessoas que foram aprovadas em concurso público;

Considere ainda que todos os policiais federais foram aprovados em concurso público e praticam tiro.

Com base na situação apresentada e nos conhecimentos envolvendo estruturas lógicas, lógicas sentenciais e operações com conjuntos, julgue os itens **54 a 57** a seguir.

54. Considerando P: "Alguém é policial federal"; Q: "A pessoa pratica tiro"; R: "A pessoa foi aprovada em concurso público", teremos que a afirmação "Se Alguém é policial federal, então pratica tiro e foi aprovada em concurso público" pode ser representada simbolicamente por: **"P → (Q v R)".**

Gabarito: Errado

Comentário: Analisando a situação apresentada, temos a seguinte afirmação:

*"Se Alguém é policial federal, então pratica tiro **e** foi aprovada em concurso público"*

Notem que temos uma condicional e uma conjunção, dessa forma, a correta representação será:

"P → (Q ^ R)".

Verificamos que o item está **ERRADO**, pois apresentou uma disjunção no lugar da conjunção.

55. {A} ⊃ {B}

Gabarito: Errado

Comentário: Pessoal, a notação apresentada nos remete ao entendimento de que o conjunto A contém o conjunto B, ou seja, estaríamos dizendo que "todas as pessoas que praticam tiro são policiais federais". Isso não guarda sentido com a realidade e extrapola as informações apresentadas.

Dessa forma, o item está **ERRADO**.

56. O conjunto resultante da interseção entre {C}, que representa os aprovados em concurso público, e {A}, que representa os policiais federais, é o próprio conjunto {A}.

Gabarito: Certo

Comentário: Como o conjunto {A} está contido em {C}, tem-se que a intersecção (o que há em comum) entre os dois conjuntos resultará no próprio conjunto {A}, ou seja, no conjunto dos policiais federais.

Dessa forma, o item está **CERTO**.

57. A operação {B} ∩ {C} resulta em um conjunto que pode incluir, mas não se restringe, aos policiais federais.

Gabarito: Certo

Comentário: Sabemos que o conjunto {A} representa os policiais federais, que, por sua vez, também estão inseridos nos conjuntos {B} e {C}.

Dessa forma, ao realizar a interseção entre B e C, podemos garantir que pelo menos os policiais federais atenderão a esses dois critérios (praticar tiro e ter sido aprovado em concurso), no entanto, também podem existir outras pessoas que não são policiais federais e atendem a esses requisitos.

Sendo assim, verificamos que o item está **CERTO**, pois pode incluir, mas não está restrito aos policiais federais.

Situação hipotética:

Ao redor de uma quadra poliesportiva retangular será construído um passeio de largura uniforme ao redor de todo o perímetro. Temos as seguintes informações:

- Área da quadra = 209 m²;
- O passeio terá 1,5 m de largura;
- Após a construção do passeio, a nova área total (quadra + passeio) será de 308 m²

Julgue o item seguinte, com base na situação hipotética e nos conhecimentos sobre raciocínio lógico envolvendo problemas aritméticos, geométricos e matriciais.

58. O perímetro original da quadra (sem considerar o passeio) é igual a 60 m.

Gabarito: Certo

Comentário: Consideremos:

- Comprimento da quadra = X
- Largura da quadra = Y

A área será:

Aq = X * Y = 209 m²

Após a construção do passeio, teremos a nova configuração:

- Comprimento total = X + 1,5*2 = X + 3
- Largura total = Y + 1,5*2 = Y + 3

98276239072 - FABIANO CARBONELL DA SILVA

A nova área será:

(X + 3) * (Y + 3) = 308

X*Y + 3X + 3Y + 9 = 308

Sabemos que X * Y = 209:

209 + 3X + 3Y + 9 = 308

3X + 3Y = 308 – 9 – 209

3X + 3Y = 90

O perímetro é 2X + 2Y, dessa forma, podemos multiplicar a última expressão por 2/3, logo:

$$(3X + 3Y) * \frac{2}{3} = 90 * \frac{2}{3}$$

$$2X + 2Y = 60$$

Portanto, temos o item como **CERTO**.

Situação hipotética:

Em um congresso internacional, estavam presentes participantes de quatro nacionalidades: brasileiros, paraguaios, argentinos e uruguaios. Considerando que o número total de participantes é representado por **Y**, foram observadas as seguintes distribuições:

- O número de **brasileiros** corresponde a **20% do total**: 1/5Y.
- O número de **paraguaios** corresponde a **um terço do total**: 1/3Y
- O número de **argentinos** equivale a **quatro quinze avos do total**: 4/15Y
- O número de **uruguaios** é fixo: **12 pessoas**

Sabe-se que **essas são todas as nacionalidades** representadas no evento, ou seja, a soma de todos esses grupos equivale ao total de participantes **Y**.

Com base na situação hipotética, julgue os itens **59 e 60** a seguir.

59. A probabilidade de selecionarmos, aleatoriamente e com reposição, duas pessoas desse congresso, e nenhuma delas ser brasileira ou uruguaia é igual a $\sqrt{0,6}$.

Gabarito: Errado

Comentário: Vamos, primeiramente, descobrir o total de pessoas de cada nacionalidade.

A soma de brasileiros (0,2Y = 1/5Y), paraguaios (1/3Y) e argentinos (4/15Y) será:

$$S = \frac{1}{5}Y + \frac{1}{3}Y + \frac{4}{15}Y$$

$$S = \frac{3+5+4}{15} = \frac{12}{15}Y = 0,8Y$$

Dessa forma, verificamos que os 12 uruguaios correspondem a 0,2Y, dessa forma, sabemos que Y = 60 pessoas. Assim, conseguimos determinar o quantitativo de cada nacionalidade:

- Brasileiros = 0,2 x 60 = 12 pessoas;
- Paraguaios = 1/3 x 60 = 20 pessoas;
- Argentinos = 4/15 x 60 = 16 pessoas;
- Uruguaios = 12 pessoas.

Como a questão pediu para o sorteio não conter brasileiros ou uruguaios, restará que os sorteados serão paraguaios ou argentinos. Dessa forma:

$$P = \frac{20+16}{60} = \frac{36}{60} = 0,6$$

Como serão sorteadas duas pessoas:

$$P = 0,6\ x\ 0,6 = 0,36$$

Então, o item está **ERRADO**, pois o correto seria $0,6^2$ e não sua raiz.

60. O total de maneiras distintas de montar uma equipe composta por 2 brasileiros, 1 paraguaio e 1 argentino é inferior a 21.500.

Gabarito: Certo

Comentário: Teremos os seguintes:

Brasileiros:

$$C_2^{12} = \frac{12!}{(12-2)!x\ 2!} = \frac{12\ x\ 11}{2} = 66\ possibilidades$$

Paraguaios = 20

Argentinos = 16

Calculando o total de maneiras distintas de montar essa equipe:

98276239072 - FABIANO CARBONELL DA SILVA

- T = 66 x 20 x 16
- **T = 21.120**

Portanto, o item está **CERTO**.

-- BLOCO II --

INFORMÁTICA

No que se refere a redes de computadores, julgue os itens que se seguem.

61. Na comunicação em *broadcast,* uma mensagem é enviada para todos os destinos disponíveis na rede.

Gabarito: Certo

Comentário: a transmissão de dados em uma rede de computadores pode ser realizada em três sentidos diferentes: *unicast, multicast* e *broadcast.* Na comunicação em *unicast,* uma mensagem só pode ser enviada para um destino; em *multicast,* uma mensagem é enviada para um grupo de destino; e em ***broadcast,*** uma **mensagem é enviada para todos os destinos**.

62. Por conta de problemas de gerenciamento nas redes par-a-par puras, foi criada uma arquitetura P2P híbrida, que implementa uma tecnologia de definição de supernós, com funções de coordenação da rede.

Gabarito: Certo

Comentário: uma rede par-a-par (*peer-to-peer)* pura não contém hierarquia e as máquinas se comunicam diretamente, sem a existência de um servidor central. Por problemas de gerenciamento nesse tipo de rede, foi criada a arquitetura **P2P híbrida**, que permite a existência de **nós especiais (supernós)**, com funções de **coordenação da rede**. Esses computadores escolhidos para serem supernós podem conceder acesso, indexar dados compartilhados, liberar recursos, etc. Ainda assim, observe que a essência da rede *peer-to-peer* continua: comunicação direta entre os pares.

63. O cabo de par trançado é flexível e utiliza o conector BNC.

Gabarito: Errado

Comentário: o cabo de par trançado possui quatro pares de fios trançados, envoltos de um revestimento externo flexível. Esse cabo é barato, **flexível** e utiliza o conector **RJ-45**. O conector BNC, por sua vez, é utilizado no cabo coaxial.

64. O hub é um dispositivo de rede que consegue identificar o endereço de destino dos dados e encaminhá-los diretamente ao destinatário, o que contribui para o desempenho da rede e evita colisões.

Gabarito: Errado

Comentário: na verdade, o hub não possui inteligência para identificar os endereços de destino. Dessa forma, esse dispositivo simplesmente replica os dados recebidos para todas as portas, funcionando em *broadcast*, o que pode gerar colisões e comprometer o desempenho da rede.

65. A fibra óptica é um meio de transmissão de dados que utiliza pulsos de luz, em vez de sinais elétricos, o que a torna menos suscetível a interferências eletromagnéticas. No entanto, sua instalação costuma ser mais complexa e mais onerosa em comparação aos cabos metálicos.

Gabarito: Certo

Comentário: a fibra óptica transmite dados por meio de luz, geralmente em um núcleo de vidro ou plástico, sendo imune a interferências eletromagnéticas. Em contrapartida, o custo de instalação e a necessidade de equipamentos específicos tornam sua implementação mais cara e técnica em comparação aos cabos tradicionais (metálicos).

98276239072 - FABIANO CARBONELL DA SILVA

66. O mecanismo WPA2 (*Wi-Fi Protected Access 2)* é um protocolo de segurança para redes *Wi-Fi* que utiliza uma chave de criptografia compartilhada entre o roteador e os dispositivos. Por apresentar vulnerabilidades comprometedoras, atualmente não é mais utilizado.

Gabarito: Errado

Comentário: a assertiva descreveu características do mecanismo de segurança ***WEP*** (*Wired Equivalent Privacy),* que foi um dos primeiros protocolos de segurança utilizados em redes *Wi-Fi* e que atualmente não é mais utilizado, devido a suas vulnerabilidades. Em contrapartida, o WPA2 utiliza fortes mecanismos de criptografia e uma camada sólida de segurança para redes *Wi-Fi* atualmente.

67. A camada de sessão do modelo OSI é responsável pelo endereçamento lógico dos pacotes de dados e pela seleção do melhor caminho para que esses pacotes cheguem ao destino.

Gabarito: Errado

Comentário: o endereçamento lógico e a escolha do melhor caminho (roteamento) são funções da camada de rede do modelo OSI, que utiliza protocolos como o IP para essa finalidade. Já a camada de sessão tem como principal responsabilidade estabelecer, manter e encerrar sessões de comunicação entre aplicações, coordenando o diálogo e gerenciando a sincronização de dados durante a troca de informações.

68. No modelo OSI, tanto a camada de enlace quanto a camada de transporte podem implementar mecanismos de controle de fluxo. Enquanto a camada de enlace realiza esse controle entre dispositivos diretamente conectados, garantindo que o transmissor não envie dados mais rapidamente do que o receptor pode processar naquele enlace específico, a camada de transporte executa esse controle de forma fim a fim, entre as aplicações de origem e destino, mesmo que em redes distintas.

Gabarito: Certo

Comentário: a camada de **enlace de dados** pode usar controle de fluxo **nó a nó**, ou seja, entre dois dispositivos diretamente conectados, como em um enlace *Ethernet*. Já a camada de **transporte**, com protocolos como o TCP, realiza o controle de fluxo **fim a fim**, assegurando que a origem não sobrecarregue o destino ao longo da conexão.

Com base nos conceitos de *cloud computing* e de correio eletrônico, julgue os itens subsequentes:

69. Um cliente de e-mail é uma aplicação instalada em uma máquina local para enviar/receber mensagens eletrônicas, enquanto um *webmail* é uma aplicação utilizada para a mesma finalidade, mas hospedada em um servidor web remoto.

Gabarito: Certo

Comentário: de fato, uma aplicação instalada em uma **máquina local** para enviar/receber e-mails é denominada **cliente de e-mail**; e um ***webmail*** trata-se de uma aplicação hospedada em um **servidor web** remoto para a mesma finalidade. Assim, as duas definições apresentadas na assertiva estão corretas.

70. No modelo IaaS (*Infrastructure as a Service*), o provedor de nuvem é responsável pela gestão dos servidores, armazenamento e redes, enquanto o usuário gerencia a instalação e manutenção dos sistemas operacionais.

Gabarito: Certo

Comentário: no modelo IaaS (Infraestrutura como Serviço), o provedor gerencia a infraestrutura física (como servidores, armazenamento e redes), enquanto o usuário é responsável pela instalação e manutenção do sistema operacional e dos softwares que utiliza, oferecendo maior flexibilidade e controle sobre a plataforma.

98276239072 - FABIANO CARBONELL DA SILVA

A respeito de Internet e de navegadores web, julgue os itens a seguir.

71. A *dark web* só é acessível por meio de redes criptografadas, como a rede Tor.

Gabarito: Certo

Comentário: a *dark web* inclui páginas web que hospedam atividades ilegais, como tráfico de drogas e vendas de órgãos humanos. Assim, para acessá-la é necessária a utilização de redes criptografadas, sendo a mais famosa delas conhecida como rede Tor (*The Onion Router*).

72. Uma intranet é uma rede privada que utiliza os mesmos protocolos e tecnologias da Internet, como o protocolo HTTP, porém com acesso restrito aos membros autorizados de uma organização.

Gabarito: Certo

Comentário: a intranet é uma rede interna utilizada por organizações para facilitar a comunicação, o compartilhamento de informações e o acesso a sistemas corporativos. Esse tipo de rede utiliza os mesmos protocolos da Internet e seu acesso é restrito aos usuários autorizados.

73. O atalho de teclado *Ctrl + N* abre uma nova guia na janela ativa do navegador Microsoft Edge.

Gabarito: Errado

Comentário: na verdade, o atalho de teclado *Ctrl + N* abre uma nova janela do Microsoft Edge. O atalho que abre uma nova guia na mesma janela do Edge é *Ctrl + T.*

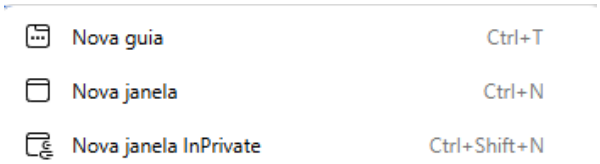

Com relação a sistemas operacionais, julgue os itens que se seguem.

74. No Linux, o comando *ipconfig* permite visualizar e configurar parâmetros de conexão à Internet, como endereço IP e máscara de sub-rede.

Gabarito: Errado

Comentário: na verdade, o comando *ipconfig* é utilizado no Windows para visualizar os parâmetros de rede. No Linux, o comando correto é *ifconfig.*

75. O Linux é um sistema multiusuário, apesar de não ser possível a execução de mais de uma aplicação ao mesmo tempo.

Gabarito: Errado

Comentário: o Linux é um sistema multiusuário, pois permite a existência de várias contas de usuário na mesma máquina. Além disso, é um sistema multitarefa, permitindo a execução de mais de uma aplicação simultaneamente.

76. No Windows 10, é possível nomear um arquivo com o seguinte termo: *PF@#$%&*.

Gabarito: Certo

Comentário: o Windows 10 possui nove caracteres que não podem constar em nomes de arquivos e pastas:

- CARACTERES PROIBIDOS: **\ / : * ? | “ < >**

Perceba que não há nenhum caractere proibido no termo *PF@#$%&.*

Acerca dos programas de edição de textos, planilhas e apresentações, julgue os itens a seguir.

77. No MS-Excel 2019, as recomendações apresentadas na figura a seguir indicam gráficos de linhas ou de áreas.

98276239072 - FABIANO CARBONELL DA SILVA

Gabarito: Errado

Comentário: na verdade, as recomendações apresentadas indicam **gráficos de dispersão** do MS-Excel, utilizados para mostrar o relacionamento entre conjuntos de valores.

78. No MS-Word, ao selecionar o termo "Polícia Federal" e pressionar o atalho de teclado *Ctrl + Shift + >*, o tamanho da fonte será aumentado gradualmente.

Gabarito: Certo

Comentário: no MS-Word, o atalho de teclado *Ctrl + Shift + >* possui realmente a função de aumentar o tamanho da fonte do texto selecionado.

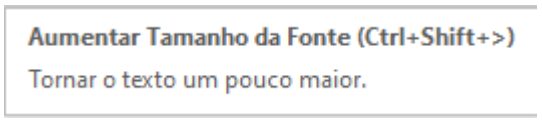

Com base nos conceitos de *data mining e business intelligence*, analise os itens a seguir.

79. *Business intelligence* trata-se de um processo empresarial para selecionar candidatos que se encaixem nos níveis de inteligência desejados por determinado negócio.

Gabarito: Errado

Comentário: a definição da assertiva não tem relação com a definição de *Business Intelligence (BI)*. Na verdade, BI pode ser definido como um processo de recolhimento (coleta) e tratamento de informações de diversas fontes, visando gerar relatórios para apoiar a gestão de um negócio.

80. A mineração de dados engloba todo o processo de descoberta de conhecimento em bancos de dados. Esse processo possui as seguintes fases: seleção; pré-processamento; transformação; e interpretação.

Gabarito: Errado

Comentário: na verdade, a mineração de dados (*data mining)* é apenas uma fase do processo de descoberta de conhecimento em bancos de dados (KDd). Esse processo possui as seguintes fases: seleção; pré-processamento; transformação; **data mining;** e interpretação.

81. Em data mining, as técnicas preditivas buscam prever os valores futuros com base em dados passados.

Gabarito: Certo

Comentário: a mineração de dados possui **técnicas preditivas** e descritivas. Enquanto as primeiras buscam **prever os valores dos dados futuros com base em dados passados** (ex: classificação e regressão), as do segundo grupo buscam descrever relações entre variáveis e resumir grandes quantidades de dados (ex: agrupamento e regras de associação).

Considerando a teoria da informação, julgue os itens a seguir:

82. O conhecimento tácito é objetivo, experimental, fácil de capturar e muitas vezes proveniente de experiências vivenciadas.

Gabarito: Errado

Comentário: em síntese, um conhecimento é gerado com a aplicação da informação, podendo ser tácito ou explícito. O **conhecimento tácito** é **subjetivo**, cognitivo, **experimental**; **difícil de capturar** ou documentar; **proveniente de experiências**; pessoal e internalizado. Já o conhecimento explícito é objetivo, racional, técnico, estruturado;

98276239072 - FABIANO CARBONELL DA SILVA

proveniente da racionalidade; fácil de documentar (externalizar).

83. Com base na espiral do conhecimento, considera-se socialização o conhecimento pessoal repassado para o domínio público por meio de livros ou artigos científicos.

Gabarito: Errado

Comentário: a espiral do conhecimento apresenta quatro formas de transmissão do conhecimento. Em síntese:

- ***Socialização: troca de ideias e compartilhamento de experiências;***
- *Externalização: conhecimento pessoal repassado por meio de documentação;*
- *Combinação: agrupamento de conhecimento explícito de várias fontes;*
- *Internalização: adquirir conhecimento por meio de documentação.*

Perceba que a assertiva descreveu características da externalização.

Com base na arquitetura TCP/IP, julgue os itens a seguir.

84. O ICMP (*Internet Control Message Protocol)* é um protocolo auxiliar do IP que atua na camada de aplicação.

Gabarito: Errado

Comentário: tendo em vista que o IP não apresenta mecanismos integrados para notificação de erros ao remetente dos dados, o ICMP atua em seu auxílio, com funções de comunicação de ocorrência de situações anormais nas transferências de pacotes na rede. No entanto, o protocolo **ICMP** atua na **camada de Rede/Internet** da arquitetura TCP/IP, assim como o IP.

85. O protocolo UDP (*User Datagram Protocol*) faz parte da camada de transporte e fornece um serviço de entrega sem controle de fluxo e de congestionamento.

Gabarito: Certo

Comentário: o UDP não comunica o destinatário que enviará pacotes antes de enviá-los, ou seja, fornece um serviço de entrega sem conexão. Além disso, o UDP não implementa controle de fluxo e de congestionamento, sendo bem limitado em comparação ao TCP (*Transmission Control Protocol*).

Com referência a conceitos de proteção e de segurança da informação, julgue os itens a seguir.

86. A confidencialidade da informação visa garantir que apenas pessoas autorizadas tenham acesso aos dados, protegendo-os contra divulgação não autorizada.

Gabarito: Certo

Comentário: o princípio da confidencialidade está relacionado à proteção da informação contra acessos não autorizados. Seu objetivo é garantir que os dados sejam acessados somente por quem tenha permissão, sendo implementado por meio de mecanismos como criptografia, controle de acesso e senhas.

87. A engenharia social consiste em um conjunto de técnicas que exploram falhas em softwares e serviços de rede, visando comprometer sistemas por meio da execução remota de códigos maliciosos.

Gabarito: Errado

Comentário: na verdade, a engenharia social é um tipo de ataque que visa explorar o comportamento humano, e não vulnerabilidades técnicas. Por meio de técnicas de manipulação e persuasão, o atacante induz a vítima a revelar informações confidenciais ou a realizar ações que comprometam a segurança do sistema, como clicar em links maliciosos ou fornecer senhas.

98276239072 - FABIANO CARBONELL DA SILVA

88. O firewall é um dispositivo de segurança que monitora e controla o tráfego de entrada e saída de dados da rede, sendo capaz de detectar e bloquear acessos que não estejam em conformidade com a política de segurança da rede.

Gabarito: Certo

Comentário: o firewall é um dispositivo de segurança que pode ser composto de software e/ou hardware, possuindo o principal objetivo de **proteger a rede de acessos potencialmente prejudiciais**. Dito isto, realmente o firewall é capaz de monitorar, controlar, analisar e filtrar o tráfego de entrada e saída de dados da rede, bloqueando ameaças e ajustando de forma recorrente a sua política de segurança.

Com relação a conceitos de programação Python e R, julgue os itens que se seguem.

89. Em Python, listas são estruturas de dados mutáveis e ordenadas, que podem armazenar elementos de diferentes tipos, inclusive outras listas.

Gabarito: Certo

Comentário: lista (*list*) é uma estrutura mutável, ou seja, seus elementos podem ser alterados após a criação. Além disso, uma lista é ordenada, pois mantém a ordem de inserção dos itens. Outrossim, uma lista pode conter elementos heterogêneos, como inteiros, strings e até outras listas (listas aninhadas). Exemplo:

```
a = [1, "texto", [3, 4], 9.5]
```

90. Em Python, o código a seguir exibirá a seguinte saída: [2, 4, 4, 8]

```
def processar(valores):
    resultado = []
    for v in valores:
        if v % 2 == 0:
            resultado.append(v * 2)
        else:
            resultado.append(v + 1)
    return resultado
lista = [1, 2, 3, 4]
print(processar(lista))
```

Gabarito: Certo

Comentário: no código apresentado, a primeira linha define uma função chamada processar, que recebe um parâmetro chamado valores. Esse parâmetro será uma lista de números.

Após isso, é criada uma lista vazia chamada resultado, que será usada para armazenar os novos valores processados.

Dentro do laço *for*:

- Se o valor for par (v % 2 == 0), multiplica por 2 – e adiciona *(append)* na lista resultado [];
- Se o valor for ímpar, soma 1 – e adiciona *(append)* na lista resultado [].

A lista que será testada é [1, 2, 3, 4].

Aplicando a lógica da função sobre cada número dessa lista:

1 → ímpar → 1 + 1 = 2

2 → par → 2 × 2 = 4

3 → ímpar → 3 + 1 = 4

4 → par → 4 × 2 = 8

Portanto, a saída realmente será: **[2, 4, 4, 8]**.

91. A linguagem R, por ser interpretada, realiza a verificação de erros de lógica e uso de variáveis apenas após o carregamento completo do script na memória, e não durante a execução linha por linha.

Gabarito: Errado

Comentário: na verdade, como uma linguagem interpretada, R executa o código linha por linha, verificando erros durante a execução, no momento em que cada linha é interpretada. Se um erro é

98276239072 - FABIANO CARBONELL DA SILVA

encontrado em uma linha, a execução é interrompida naquele ponto.

Julgue os itens a seguir referentes a modelagem conceitual de bancos de dados.

92. Em um modelo conceitual de banco de dados, a representação de um atributo multivalorado de uma entidade pode ser solucionada, na etapa de modelagem lógica, através da criação de uma nova entidade associativa ligando a entidade original ao atributo, garantindo assim a primeira forma normal (1FN).

Gabarito: Certo

Comentário: atributos multivalorados violam a primeira forma normal, que exige que cada atributo de uma entidade contenha um único valor atômico. Na modelagem lógica, para normalizar o modelo, um atributo multivalorado é geralmente transformado em uma nova entidade separada, com uma relação de um-para-muitos (ou muitos-para-muitos, dependendo da cardinalidade) com a entidade original. Essa nova entidade terá o valor do atributo multivalorado como seu atributo principal, além de uma chave estrangeira referenciando a entidade original, estabelecendo a ligação entre elas.

93. Uma entidade fraca depende de outra entidade para existir, sendo representada no diagrama entidade-relacionamento por meio de um duplo losango.

Gabarito: Errado

Comentário: uma entidade fraca, de fato, é aquela que depende de outra para existir, não podendo ser identificada unicamente por seus atributos. Entretanto, uma **entidade fraca** é representada no DER por meio de um **duplo retângulo**. Um losango identifica relacionamentos, e não entidades.

94. No modelo entidade-relacionamento a seguir, um delegado pode liderar apenas uma equipe, mas uma equipe pode ser liderada por muitos delegados.

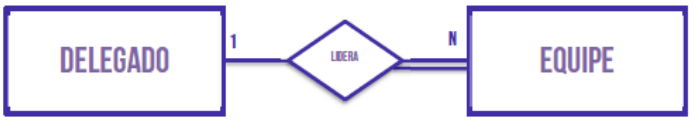

Gabarito: Errado

Comentário: no MER apresentado na assertiva, uma instância da entidade DELEGADO pode liderar de 0 a N equipes (restrição de participação parcial – linha simples); e uma instância da entidade EQUIPE deve ser liderada por um delegado (restrição de participação total – linha dupla). Outrossim, um delegado pode liderar N (muitas) equipes; e uma equipe só pode ser liderada por um delegado (leitura de dentro para fora).

Com base nos conceitos de bancos de dados e de SQL, julgue os itens a seguir.

95. Na arquitetura ANSI/SPARC, a independência lógica dos dados trata da capacidade de alterar o esquema conceitual sem precisar modificar as aplicações.

Gabarito: Certo

Comentário: a arquitetura ANSI/SPARC se divide em três níveis independentes: externo, conceitual e interno. Dito isto, a independência lógica dos dados trata da capacidade de alterar o esquema conceitual sem precisar modificar os esquemas externos ou programas/aplicações.

96. Em SQL (*Structured Query Language*), o comando a seguir recupera todas as colunas e apenas a primeira linha da tabela PF.

*SELECT * FROM PF;*

Gabarito: Errado

Comentário: SQL é uma linguagem para manipulação de banco de dados relacionais. Dito isto, o

98276239072 - FABIANO CARBONELL DA SILVA

comando *SELECT * FROM PF* recupera todas as colunas (*) e todas as linhas da tabela "PF", não limitando a seleção a primeira linha. Para recuperar apenas a primeira linha em uma consulta, o usuário precisa utilizar cláusulas específicas dependendo do SGBD utilizado. Alguns exemplos comuns incluem:

- *MySQL e PostgreSQL: SELECT * FROM PF LIMIT 1;*
- *SQL Server: SELECT TOP 1 * FROM PF;*
- *Oracle: SELECT * FROM PF WHERE ROWNUM = 1;*

98276239072 - FABIANO CARBONELL DA SILVA

-- BLOCO III --

CONTABILIDADE GERAL

A respeito do processo de escrituração contábil, julgue o item subsequente.

97. Para a correta elaboração do livro razão, são indispensáveis a identificação da conta escriturada, o histórico do lançamento e o saldo da conta contendo a indicação de devedor ou credor.

Gabarito: Certo

Comentário: Exatamente! A escrituração dos lançamentos no livro razão deve conter os seguintes dados:

- **Nome e código da conta;**
- Data do registro contábil, ou seja, a data em que o fato contábil ocorreu;
- Conta devedora;
- Conta credora;
- **Histórico do lançamento;**
- Valor do registro contábil;
- **Saldo da conta, indicando se devedor ou credor**

Com relação aos objetivos, finalidades, conceitos, objetos e campos de atuação que caracterizam a ciência contábil, julgue os itens a seguir.

98. Um dos principais objetivos da contabilidade é fornecer informações úteis que subsidiem o processo de tomada de decisões econômicas.

Gabarito: Certo

Comentário: Isso mesmo! A contabilidade possui como objetivo principal o fornecimento de informações úteis para auxiliar na tomada de decisões dos usuários da informação contábil.

- Objetivo ⍰ fornecer informações úteis para tomada de decisões.
- Finalidade ⍰ controlar o patrimônio.

99. Sob a ótica da ciência contábil, existe entidade contábil mesmo se não tiver patrimônio

Gabarito: Errado

Comentário: Na verdade, o objeto da contabilidade é o patrimônio da entidade. Sendo assim, sem patrimônio não há como a contabilidade atingir seus objetivos. Portanto, para a contabilidade, é obrigatório que a entidade tenha patrimônio.

100. As ciências contábeis são uma ciência social pertencente à área de conhecimento das ciências exatas.

Gabarito: Errado

Comentário: Na verdade, a contabilidade não é uma ciência exata, mas sim uma **ciência social** que pertence à área de conhecimento das ciências sociais aplicadas.

Em relação ao balancete de verificação, julgue o item que se segue.

101. O balancete de verificação tem como objetivo verificar o método das partidas dobradas e auxiliar na preparação das demonstrações contábeis. Desse modo, o balancete de verificação identificará o erro de registro em um pagamento de dividendos no valor de R$ 1.000, quando for debitado Dividendos a pagar em R$ 10.000 e creditado Caixa em R$ 1.000, por exemplo.

Gabarito: Certo

Comentário: Exatamente! O balancete de verificação é um demonstrativo auxiliar que possui o objetivo de verificar se o método das partidas dobradas foi aplicado corretamente.

Desse modo, possíveis erros de lançamentos entre contas com valores divergentes, como o

98276239072 - FABIANO CARBONELL DA SILVA

apresentado na questão, serão identificados através do balancete de verificação, pois o lançamento não estará de acordo com o método das partidas dobradas.

Assim, o lançamento a seguir não segue o método das partidas dobradas, pois o total de créditos não corresponde ao total de débitos:

- D – Dividendos a pagar (passivo) R$ 10.000
- C – Caixa (ativo) R$ 1.000

Julgue o item seguinte, a respeito dos processos e procedimentos de escrituração.

102. Os lançamentos em escrituração contábil são realizados em contas sintéticas que compõem um plano de contas.

Gabarito: Errado

Comentário: Na verdade, as **contas sintéticas** não recebem lançamentos contábeis, visto que são contas que agregam os valores das contas **analíticas**.

Sendo assim, são as contas analíticas que recebem os lançamentos contábeis.

- **Contas sintéticas:** consolidam os saldos de contas a ela vinculadas. Não recebem lançamentos
- **Contas analíticas:** são utilizadas para controle e acompanhamento específicos.

Em relação a contas e sua natureza e escrituração de fatos administrativos, julgue os itens seguintes.

103. Como exemplo de escrituração de um fato modificativo, tem-se a ocorrência de lançamentos em contas de ativo circulante e de passivo não circulante como contrapartidas uns dos outros.

Gabarito: Errado

Comentário: Na verdade, a questão apresenta o conceito de fatos **permutativos**, que apresenta lançamentos entre o ativo e passivo como contrapartidas uns dos outros.

Para os fatos **modificativos**, é necessário que tenha lançamentos em contas de **resultado** ou em contas que alteram o **patrimônio líquido** da entidade, com contrapartida em uma conta do ativo ou do passivo.

Exemplo de fato modificativo é o aporte financeiro de capital social realizado pelos sócios:

- D – Caixa (ativo)
- C – Capital social (patrimônio líquido)

104. O patrimônio de uma entidade é representado pelo conjunto de bens, direitos e obrigações.

Gabarito: Certo

Comentário: Exatamente! O patrimônio da entidade contábil é representado pelo conjunto de **bens, direitos e obrigações** da entidade.

105. A situação patrimonial líquida de uma entidade será negativa quando o patrimônio líquido em determinado período for menor que o passivo nesse mesmo período.

Gabarito: errado

Comentário: Na verdade, a situação patrimonial líquida de uma entidade pode ser **positiva** se o patrimônio líquido em determinado período for menor do que o passivo nesse mesmo período. Vejamos:

- Ativo: R$ 1.000
- Passivo: R$ 700
- Patrimônio Líquido: R$ 300

Assim, a situação patrimonial líquida da entidade será negativa quando o valor do patrimônio líquido for menor do que 0.

- Patrimônio Líquido = 0 : situação patrimonial líquida **nula**
- Patrimônio Líquido > 0 : situação patrimonial líquida **positiva**
- Patrimônio Líquido < 0 : situação patrimonial líquida **negativa**

98276239072 - FABIANO CARBONELL DA SILVA

106. As contas de depreciação acumulada de ativos serão debitadas quando houver a alienação do ativo a que fizerem referência.

Gabarito: Certo

Comentário: Isso mesmo! A conta **depreciação acumulada** é uma conta retificadora do ativo. Assim, possui natureza credora. Portanto, no momento da alienação do ativo que apresenta depreciação acumulada, o lançamento da baixa da depreciação acumulada é:

- D – Depreciação acumulada (retificadora do ativo)
- C – Ativo imobilizado (ativo)

Com relação ao reconhecimento de itens patrimoniais ativos, à sua mensuração inicial e à sua avaliação posterior, julgue os itens que se seguem.

107. Na mensuração de um ativo intangível desenvolvimento internamente, os gastos ocorridos na fase de pesquisa são reconhecidos como despesa no período em que ocorrem, enquanto os gastos de desenvolvimento podem ser capitalizados como ativo intangível, desde que atendam aos requisitos normativos existentes.

Gabarito: Certo

Comentário: Isso mesmo! Os **gastos com pesquisa** (ou da fase de pesquisa de projeto interno) devem ser reconhecidos como **despesa** quando incorridos, visto que a entidade não está apta a demonstrar a existência de ativo intangível que gerará prováveis benefícios econômicos futuros. Portanto, tais gastos são reconhecidos como despesa quando incorridos.

Na fase de **desenvolvimento**, quando o ativo demonstra ser viável e quando requisitos mais sólidos são alcançados, este ativo por ser reconhecido. Assim, os gastos incorridos na fase de **desenvolvimento** podem ser capitalizados como ativo intangível caso atendam aos requisitos necessários.

Vejamos alguns requisitos para o reconhecimento de um ativo na fase de desenvolvimento:

- Viabilidade técnica para concluir o ativo
- Intenção de concluir o ativo para uso ou venda
- Capacidade de usar ou vender o ativo
- Forma como o ativo gera benefícios econômicos futuros
- Disponibilidade de recursos para concluir o desenvolvimento
- Capacidade de mensurar os gastos

108. As entidades devem realizar, anualmente, testes para verificar se seus ativos intangíveis, com vida útil definida ou não, estão mantendo a perspectiva de geração de benefícios econômicos no mínimo equivalentes ao seu custo contábil.

Gabarito: Errado

Comentário: Na verdade, para os ativos intangíveis com **vida útil definida**, o teste só será necessário se houver indícios de perda. Assim, não é obrigatório realizar o teste anualmente para ativos intangíveis com vida útil **definida**.

Porém, para os ativos intangíveis com **vida útil indefinida**, será obrigatório realizar o teste anualmente mesmo se não houver indícios de perda.

Portanto, o erro está em afirmar que as entidades **devem** realizar, anualmente, testes para verificar se seus ativos intangíveis, **com vida útil definida ou não,** estão mantendo a perspectiva de geração de benefícios.

Vejamos:

Ativo intangível com vida útil definida:

- Amortiza;
- Teste de recuperabilidade, **se houver indícios de perda.**

Ativo intangível com vida útil indefinida:

- Não realiza amortização;

98276239072 - FABIANO CARBONELL DA SILVA

- Teste de recuperabilidade é obrigatório **anualmente**, mesmo se não houver indícios de perda.

Com respeito ao balanço patrimonial, julgue os itens a seguir.

109. No balanço patrimonial, o patrimônio líquido divide-se em capital social, reserva de capital, reservas de lucros e ações em tesouraria, sendo todas as contas de natureza credora.

Gabarito: Errado

Comentário: De fato, as referidas contas fazem parte do patrimônio líquido. Porém, a conta de **ações em tesouraria** apresenta natureza **devedora**, pois é uma **conta retificadora do patrimônio líquido** e, portanto, possui natureza contrária às demais contas.

110. O balanço patrimonial permite verificar a situação financeira e patrimonial da entidade em dado momento.

Gabarito: Certo

Comentário: Exatamente! O balanço patrimonial é uma demonstração contábil estática destinada a evidenciar, quantitativa e qualitativamente, em determinado momento, a posição patrimonial e financeira da entidade.

- Posição patrimonial: relação de bens, direitos e obrigações
- Posição financeira: valor monetário dos itens patrimoniais

É como se tirássemos uma fotografia da companhia em determinado ponto. Então, ao final do que chamamos de exercício social, pegamos todos os saldos dos elementos patrimoniais e colocamos nas diversas demonstrações contábeis.

Contas	Valor (R$)
Caixa	20.000
Duplicatas a pagar no curto prazo	33.000
Imóvel	170.000
Estoque de materiais de consumo	5.000
Empréstimo de curto prazo	50.000
Salários a pagar	400.000
Valores a receber de longo prazo	10.000
Aplicações financeiras de liquidez imediata	15.000
Veículos	80.000
Adiantamento de salários	290.000
Devoluções e restituições a receber de curto prazo	30.000
Encargos sociais a recolher	15.000
Depreciação acumulada	20.000

Tendo como referência as contas de uma entidade apresentadas para a elaboração do balanço patrimonial, conforme a tabela precedente, julgue os próximos itens.

111. O ativo circulante é representado por cinco contas, que totalizam R$ 360.000

Gabarito: Certo

Comentário: Isso mesmo! Vejamos o somatório das contas do ativo **circulante**

- **Caixa:** R$ 20.000
- **Estoque de materiais de consumo:** R$ 5.000
- **Aplicações financeiras de liquidez imediata:** R$ 15.000
- **Adiantamento de salários:** R$ 290.000
- **Devoluções e restituições a receber de curto prazo:** R$ 30.000
- **Total:** R$ 360.000

A conta **adiantamento de salários** é classificada no ativo circulante porque os salários são pagos **mensalmente** e, consequentemente, o adiantamento de salários ocorre no mês antes do

98276239072 - FABIANO CARBONELL DA SILVA

pagamento, ou seja, classifica-se no ativo circulante.

112. O ativo imobilizado da entidade corresponde a R$ 250.000

Gabarito: Errado

Comentário: As contas do **ativo imobilizado** são:

- **Imóvel:** R$ 170.000
- **Veículos:** R$ 80.000
- **(-) Depreciação acumulada:** R$ 20.000
- **Total:** R$ 230.000

Assim, a conta **depreciação acumulada** é uma conta retificadora dos ativos imobilizados.

113. As dívidas de curto prazo superam em mais de 30% o valor dos ativos de curto prazo

Gabarito: Errado

Comentário: Os ativos de **curto prazo** são as contas do **ativo circulante**. Assim, o somatório total é R$ 360.000

- **Caixa:** R$ 20.000
- **Estoque de materiais de consumo:** R$ 5.000
- **Aplicações financeiras de liquidez imediata:** R$ 15.000
- **Adiantamento de salários:** R$ 290.000
- **Devoluções e restituições a receber de curto prazo:** R$ 30.000
- **Total: R$ 360.000**

As **dívidas de curto prazo** são as contas do **passivo circulante**. Assim, vejamos o somatório total:

- **Duplicatas a pagar no curto prazo:** R$ 33.000
- **Empréstimos de curto prazo:** R$ 50.000
- **Salários a pagar:** R$ 400.000
- **Encargos sociais a recolher:** R$ 15.000
- **Total: R$ 498.000**

30% do passivo circulante é: 498.000 x 0,30 = **149.400**

Somando o **ativo circulante** com 30% do passivo circulante: 360.000 + 149.400 = **509.400**

Logo, as dívidas de curto prazo **não superam** em mais de 30% o valor dos ativos de curto prazo

Julgue os próximos itens, a respeito das demonstrações financeiras.

114. Os abatimentos e os descontos incondicionais concedidos constituem montante separado das despesas operacionais na demonstração do resultado do exercício.

Gabarito: Certo

Comentário: Exatamente! Na demonstração do resultado do exercício, os **descontos incondicionais** e os **abatimentos** concedidos são deduções da **receita bruta de vendas**. Assim, esses valores são separados das **despesas operacionais**, que são deduções do lucro bruto.

Vejamos:

- Faturamento bruto
  - (-) IPI sobre faturamento bruto
- = **Receita bruta**
  - (-) devoluções e vendas canceladas
  - (-) **abatimentos**
  - (-) **descontos comerciais (incondicionais)**
  - (-) impostos
- = Receita Líquida
  - (-) Custo da mercadoria vendida (CMV)
- = **Lucro Bruto (Resultado Bruto**)
  - **(-) despesas operacionais**
    - Despesas com vendas
    - Despesas gerais e administrativas
    - Despesas financeiras (condicional)
  - (+) Receitas operacionais

= Lucro Líquido (Resultado líquido

98276239072 - FABIANO CARBONELL DA SILVA

115. O imposto sobre produtos industrializados é uma dedução da receita bruta na demonstração do resultado do exercício.

Gabarito: Errado

Comentário: Na verdade, na demonstração do resultado do exercício, o **imposto sobre produtos industrializados (IPI)** representa uma dedução do **faturamento bruto,** pois o IPI é um imposto por fora, ou seja, não faz parte da receita bruta de vendas.

Vejamos:

- **Faturamento bruto**
  - (-) **IPI sobre faturamento bruto**
- = **Receita bruta**
  - (-) devoluções e vendas canceladas
  - (-) abatimentos
  - (-) descontos comerciais (incondicionais)
  - (-) impostos
- = Receita Líquida

116. Todas as demonstrações contábeis devem ser elaboradas seguindo o regime de competência.

Gabarito: Errado

Comentário: Na verdade, não são todas as demonstrações contábeis que devem ser elaboradas seguindo o regime de competência.

A demonstração do **fluxo de caixa** segue o regime de caixa.

De acordo com o CPC 26 (R1) *A entidade deve elaborar as suas demonstrações contábeis,* ***exceto para a demonstração dos fluxos de caixa,*** *utilizando-se do regime de competência.*

Acerca das sociedades anônimas, julgue os itens seguintes.

117. A reserva legal de determinada companhia apenas poderá ser utilizada para compensar prejuízos e para aumentar o capital social.

Gabarito: Certo

Comentário: Exatamente! De acordo com a Lei 6.404/76, *a* ***reserva legal*** *tem por fim assegurar a integridade do capital social e somente poderá ser utilizada para* ***compensar prejuízos*** *ou* ***aumentar o capital.***

118. A reserva de capital pode ser utilizada para absorção de prejuízos que ultrapassem os lucros acumulados e as reservas de lucros.

Gabarito: Certo

Comentário: Exatamente! De acordo com a Lei 6.404/76:

As ***reservas de capital*** *somente poderão ser utilizadas para:*

I. Absorção de prejuízos que ultrapassarem os lucros acumulados e as reservas de lucros;

II. Resgate, reembolso ou compra de ações;

III. Resgate de partes beneficiárias;

IV. Incorporação ao capital social;

V. Pagamento de dividendos a ações preferenciais, quando essa vantagem lhes for assegurada.

À luz dos pronunciamentos técnicos do Comitê de Pronunciamentos Contábeis (CPc), julgue o item que se segue.

119. O método de depreciação aplicado a um ativo imobilizado deve ser revisado pelo menos ao final de cada exercício.

Gabarito: Certo

Comentário: Isso mesmo! De acordo com o CPC 27:

61. O método de depreciação aplicado a um ativo deve ser revisado pelo menos ao final de cada exercício *e, se houver alteração significativa no padrão de consumo previsto, o método de depreciação deve ser alterado para refletir essa mudança. Tal mudança deve ser registrada como mudança na estimativa contábil, de acordo com a NBC TG 23.*

98276239072 - FABIANO CARBONELL DA SILVA

120. Os empréstimos concedidos a acionistas por empresas comerciais devem ser classificados no ativo circulante se o prazo para realização desses empréstimos for inferior a 1 ano.

Gabarito: Errado

Comentário: Na verdade, os empréstimos concedidos a acionistas por **empresas comerciais** são classificados no **ativo não circulante** independentemente do prazo de realização, pois não constituem negócios usuais da empresa.

De acordo com o a Lei 6.404/76:

As contas serão classificadas do seguinte modo:

*(...) II – **no ativo realizável a longo prazo**: os direitos realizáveis após o término do exercício seguinte, assim como os derivados de vendas, adiantamentos ou **empréstimos a sociedades coligadas ou controladas, diretores, acionistas ou participantes no lucro da companhia, que não constituírem negócios usuais na exploração do objeto da companhia**;*

Assim, afirmar que os empréstimos concedidos a acionistas devem ser classificados no ativo circulante se o prazo de realização for inferior a 1 ano está incorreto, pois, independentemente do prazo, se o empréstimo não constituir negócios usuais da empresa, será classificado no **ativo realizável a longo prazo (ativo não circulante).**

98276239072 - FABIANO CARBONELL DA SILVA

-- DISCURSIVA --

A Polícia Federal (PF) desempenha um papel fundamental no enfrentamento dos crimes ambientais no Brasil, atuando na fiscalização, repressão e investigação de delitos que comprometem ecossistemas, populações locais e a economia nacional. A exploração ilegal de recursos naturais, como o desmatamento, a mineração clandestina e o tráfico de animais silvestres, tem impacto direto na biodiversidade e no equilíbrio climático. No entanto, o combate a essas práticas ilícitas envolve desafios como a extensão territorial do país, a atuação de organizações criminosas especializadas e a necessidade de articulação entre diferentes órgãos nacionais e internacionais para conter os danos ambientais.

A ATUAÇÃO DA POLÍCIA FEDERAL NO COMBATE AOS CRIMES AMBIENTAIS E A PROTEÇÃO DOS RECURSOS NATURAIS

- O papel da Polícia Federal no enfrentamento ao desmatamento ilegal e suas consequências para o meio ambiente e a economia. **[valor: 3,50 pontos]**
- Os desafios da repressão ao garimpo ilegal e os impactos dessa atividade na saúde pública e nos territórios indígenas. **[valor: 4,50 pontos]**
- A atuação da Polícia Federal no combate ao tráfico de animais silvestres e os prejuízos dessa prática para a biodiversidade. **[valor: 4,50 pontos]**

98276239072 - FABIANO CARBONELL DA SILVA

Proposta de Solução

A Polícia Federal (PF) atua no combate aos crimes ambientais no Brasil, reprimindo o desmatamento ilegal, o garimpo clandestino e o tráfico de animais silvestres. Essas práticas ameaçam a biodiversidade e geram impactos sociais e econômicos. Para enfrentá-las, a PF utiliza tecnologia, realiza operações conjuntas com outros órgãos e desarticula redes criminosas envolvidas na exploração ilegal dos recursos naturais.

Inicialmente, destaca-se a relevância da atuação da PF no combate ao desmatamento ilegal e suas consequências para o meio ambiente e a economia. A destruição de áreas florestais, especialmente na Amazônia, compromete o equilíbrio climático, reduz a biodiversidade e prejudica atividades econômicas sustentáveis, como o extrativismo e o ecoturismo. Relatórios do Instituto Nacional de Pesquisas Espaciais (INPE) indicam que, entre agosto de 2022 e julho de 2023, foram desmatados aproximadamente 9.000 km² de floresta amazônica, evidenciando a necessidade de ações repressivas mais eficazes. A Operação Arquimedes, conduzida pela PF, exemplifica essa atuação ao desmantelar um esquema de extração e exportação ilegal de madeira, resultando na apreensão de milhares de metros cúbicos de produtos florestais e na responsabilização de agentes públicos envolvidos no crime.

Ademais, os desafios da repressão ao garimpo ilegal demandam esforços conjuntos entre a PF e outros órgãos de fiscalização. A extração clandestina de minérios, especialmente ouro, provoca danos irreversíveis ao meio ambiente e compromete a saúde pública, uma vez que substâncias tóxicas, como o mercúrio, contaminam rios e solo. Além disso, o avanço do garimpo sobre terras indígenas agrava conflitos e ameaça a sobrevivência de comunidades tradicionais. A Operação Yanomami, deflagrada em 2023, exemplifica a atuação da PF ao desarticular garimpeiros ilegais que exploravam ilegalmente o território, destruindo equipamentos e impedindo a continuidade das atividades criminosas.

Por fim, a repressão ao tráfico de animais silvestres representa uma das frentes mais desafiadoras da PF no combate aos crimes ambientais. A captura e comercialização ilegal de espécies ameaçadas comprometem a biodiversidade e alimentam um mercado clandestino de alto valor. Estima-se que o tráfico de animais no Brasil movimente cerca de R$ 3 bilhões por ano, sendo um dos principais vetores de perda de fauna. A Operação Urutau, realizada pela PF, ilustra o impacto desse crime ao desmantelar uma rede que comercializava animais ilegalmente para o exterior, resultando na apreensão de milhares de espécimes. O fortalecimento da fiscalização em rodovias e aeroportos, aliado ao uso de inteligência artificial para rastrear essas redes criminosas, tem sido uma estratégia fundamental para combater essa prática.

98276239072 - FABIANO CARBONELL DA SILVA

Não é assinante?

Confira nossos planos, tenha acesso a milhares de cursos e participe gratuitamente dos projetos exclusivos. Clique no link!

http://estrategi.ac/assinaturas

Conheça nosso sistema de questões

Estratégia Questões nasceu maior do que todos os concorrentes, com mais questões cadastradas e mais soluções por professores. Clique no link e conheça!

http://estrategi.ac/ok1zt0

ESSA LEI TODO MUNDO CONHECE:
PIRATARIA É CRIME.

Mas é sempre bom revisar o porquê e como você pode ser prejudicado com essa prática.

1. Professor investe seu tempo para elaborar os cursos e o site os coloca à venda.

2. Pirata divulga ilicitamente (grupos de rateio), utilizando-se do anonimato, nomes falsos ou laranjas (geralmente o pirata se anuncia como formador de "grupos solidários" de rateio que não visam lucro).

3. Pirata cria alunos fake praticando falsidade ideológica, comprando cursos do site em nome de pessoas aleatórias (usando nome, CPF, endereço e telefone de terceiros sem autorização).

4. Pirata compra, muitas vezes, clonando cartões de crédito (por vezes o sistema anti-fraude não consegue identificar o golpe a tempo).

5. Pirata fere os Termos de Uso, adultera as aulas e retira a identificação dos arquivos PDF (justamente porque a atividade é ilegal e ele não quer que seus fakes sejam identificados).

6. Pirata revende as aulas protegidas por direitos autorais, praticando concorrência desleal e em flagrante desrespeito à Lei de Direitos Autorais (Lei 9.610/98).

7. Concurseiro(a) desinformado participa de rateio, achando que nada disso está acontecendo e esperando se tornar servidor público para exigir o cumprimento das leis.

8. O professor que elaborou o curso não ganha nada, o site não recebe nada, e a pessoa que praticou todos os ilícitos anteriores (pirata) fica com o lucro.

Deixando de lado esse mar de sujeira, aproveitamos para agradecer a todos que adquirem os cursos honestamente e permitem que o site continue existindo.